川量教育
CHUANLIANG EDUCATION

川量教育

职测天府班
专项训练讲义

目录

第一部分 言语理解与表达 1

第一章 片段阅读 1

第二章 逻辑填空 32

第二部分 判断推理 39

第一章 类比推理 39

第二章 图形推理 44

第三章 定义判断 61

第四章 逻辑判断 70

第三部分 数量关系 91

第一章 数字推理 91

第二章 数学运算 95

第四部分 资料分析 114

第一章 速算技巧 114

第二章 常考题型 120

川量教育 CHUANLIANG EDUCATION

第一部分 言语理解与表达

第一章 片段阅读

1.从线上直播带来的沉浸式观赏体验，到新媒体平台上丰富多彩的二次创作与演绎，再到借助声光电技术与 AI 创新实现的舞台互动探索，戏曲艺术与数字技术的紧密融合，不仅推动了戏曲艺术表现形式的不断创新，更为戏曲舞台增添了新的视觉享受，使越来越多的年轻人了解并爱上戏曲这门传统艺术，古老的戏曲剧目也因此焕发新生。

这段文字意在说明？（　　）

A.戏曲艺术的现代化转型

B.数字技术丰富了戏曲艺术的传播手段

C.戏曲艺术与数字技术结合，推动了戏曲艺术的传承与发展

D.年轻人更喜欢通过数字技术欣赏戏曲

2.中国与西方国家处在不同文明的话语体系与文化逻辑之中。在跨文化传播中，由于双方的信息解码规范与所处语境不同，加之中华文明自带神秘光环，“言有尽而意无穷”的典型叙事风格给外部世界理解中国文化和中国文化走向世界带来不少挑战。为了让国际社会能够理解内嵌的中国传统文化，文化输出的内容通常简化为审美符号而非观念符号，并通过典型的传统中国元素不断强化“自我东方化”的刻板印象，这让国外受众对中国文化的印象单一且流于表面，传播效果并不理想。

这段文字主要？（　　）

A.分析影响中国文化跨文化传播效果的因素

B.说明中华文明中典型而又独特的叙事风格

C.比较中西文明的文化逻辑存在的不同之处

D.论证当前讲好中国故事传播策略的可行性

3.北京故宫博物院文创产品中文化元素选取的最主要灵感来源就是馆内的一百八十余万件典藏文物。每一件文物身上都有属于它自己的时代烙印，这些来自于不同年代不同背景，用途也不同的文物，承载了无数中国传统文化的灵魂。每一个细节，都是后来人回顾历史的镜子。故宫博物院的文创产品，是我们这个时代对过往历史的解读，用这个时代的方式留住历史的痕迹。只有通过信息的传递引发当代受众对于传统文化内涵的重视，才能在潜移默化中增强故宫文化的影响力。

这段文字的主旨是？（　　）

A.故宫文创是增强中国文化影响力的主要途径

B.故宫文创承载了无数中国传统文化的灵魂

C.故宫文创的文化元素灵感来自典藏文物

D.故宫文创能传递中国传统文化信息

4.微商利用各级代理商的强关系网络进行口碑营销，通过微信朋友圈内营销产品信息的病毒式传播来实现产品的快速推广，从而使得微商能够在短期内获得高额利润，这是微商能够蓬勃发展的巨大推动力。然而，与生俱来的草根特质，加上无序野蛮生长，微商的成长过程始终伴随着人们的偏见和质疑。从最初的九宫格照片刷屏，到如今的“鸡汤”、广告泛滥，几年过去了，微商依然没有得到大多数人的接受和认可。

上述文字的主旨是？（　　）

A.微商利用强关系网络进行口碑营销

B.微商的发展伴随人们的偏见和质疑

C.微商被认为是无序野蛮生长的草根

D.对蓬勃发展的微商应给予更多支持

5.今天，在科学哲学中有一条被奉为金科玉律的公理：只有与“个别”有关的单称陈述，才是可以确证的。我们可以证明：这一只乌鸦是黑的，这一只天鹅是白的，但却永远不能证明：一切乌鸦皆黑，一切天鹅皆白。波普尔正因为独具慧眼，发现了科学理论大多是全称陈述，从而创立了证伪主义科学观。也就是说，科学理论只能证明其错（当它和作为个别事例的观察不符合时），任何一个全称科学命题不可能被最后证实。于是科学永远是假说，是一种企图去预见的、但有可能被证伪的冒险，它也必然在试错中进步。只有个别事件可以被确证，而对于普遍性的命题却不能，这在半个世纪以来几乎成为不证自明的公理。

根据上面这段话论述可知，波普尔证伪主义科学观的核心是？（　　）

A.科学理论大多是全称陈述，全称陈述是无法最后证实的

B.科学理论只能证明其错，而对全称科学命题却不能最后证实

C.科学永远是假说，它有可能被证明是错误的，也有可能是正确的

D.科学永远是假说，科学理论只能证明个例的错误，并在试错中进步

6.尽管目前我国基层群众自治组织发展取得长足进步，社会组织发展经历了从数量增长走向提质增效的阶段，企业社会责任运动从 1.0 走向了 2.0、3.0 甚至 4.0，但是从总体上看，基层治理及网格中的多元主体还是以政府为主，行政力量是最关键作用；基层自治组织的运作和管理，存在行政导向，基层群众自治能力有待提升；面向社区服务的社会组织能力还很薄弱，结构较为单一；企业特别是中小企业参与网格化治理的意识和能力还良莠不齐，多元主体的治理结构尚不成熟。

该文段主要说明了？（　　）

A.我国基层群众自治组织发展仍然存在不足

B.网格化治理多元主体间的互动机制有待完善

C.社会资源的整合、基层协同治理离不开多元主体的参与

D.基层网格化治理中多元主体能力不足

7.“内容为王”的理念在网络版权产业领域日益普及，创作者与投资者舍得在内容创作和产品制作上花时间下功夫，精雕细琢、精益求精，产品质量明显提升。优秀的网络原创作品无论思想性、艺术性还是观赏性都有了巨大进步，网络文化产品逐步摆脱了模仿抄袭、低质幼稚、粗制滥造的标签。精品力作的不断涌现，成为我国网络版权产业活力充沛的标志。

该文段主要说明了？（　　）

A.以强有力的版权保护为网络文化产业发展护航，才能更好满足人民的精神文化需求

B.版权保护有力，网络文化产业发展才会有活力

C.我国网络文化产业的版权保护意识较为薄弱

D.网络版权产业的发展需要以内容为支撑，需要花时间花功夫打造精品力作

8.谈及中国的历史，单说“魏”或“晋”时，似无出奇之处，但如果把“魏”和“晋”连在一起说出来，一个光照千古的神奇概念就骤然出现：魏晋风度。与汉朝的敦实厚重、三国的慷慨激荡、唐朝的盛大开放、宋朝的清丽婉约不同，魏晋人物以率性不羁、旷达玄远著称。这是当时整个社会的精神时尚和审美追求，魏晋也因此而成为中国历史上空前绝后和争议最大的时代。

这是一篇文章的开头部分，据此推测，这篇文章谈论的重点应该是？（　　）

A.魏晋时期的社会环境

B.魏晋时期的文学成就

C.魏晋人物及其精神风貌

D.魏晋风度对后世的影响

9.新中国成立初期的 30 年间，中国在国际期刊上发表的论文主要研究方向大部分为基础性自然科学学科。1980 年以来，众多学科快速发展，取得了举世瞩目的成就：材料科学论文产出总量位居全球第一；农业科学、化学、计算机科学、工程学、环境与生态学、地球科学、数学、物理学的论文产出位居全球第二；分子生物学与遗传学、药理学与毒理学的论文产出位居全球第三。数据同时表明，中国内地学科布局与发展逐步均衡、全面，各个学科的影响力持续增长，逐步接近全球领先水平。

这段文字意在说明？（　　）

A.中国基础科学的进步是综合国力提升的直观体现

B.整体而言中国各学科的发展已居于全球领先水平

C.论文产出数据表明中国在基础科研方面进步明显

D.我国不同时期自然科学领域的学科布局差异显著

10.就昆虫和植物而言，缅甸琥珀有着独特的研究价值。它多产生于一亿年前，这一时期正是很多开花植物及昆虫在地球上出现的时候。和岩石标本相比，琥珀中的生物都是立体的，细节也完整，还有很多行为学的证据，如蚂蚁打架、昆虫拟态伪装等。这些重要的行为在之前的动物标本中都是缺失的，而缅甸琥珀的出现填补了很多关键的空白。

上述材料重在说明？（　　）

A.缅甸琥珀可以弥补岩石标本信息的不足

B.缅甸琥珀对昆虫和植物的研究意义重大

C.缅甸琥珀历史久且具有独特的文化价值

D.缅甸琥珀以保留昆虫行为学证据为特征

11.任何一个生命体都有生命周期，城市成长亦如此。人为拔苗助长只会打乱其发展过程中正常的自适应能力，进而引发一系列“城市病”，例如城市拥堵、环境污染、资源短缺等。“城市病”并非城市化进程中不可避免的问题，城市人口过快增长带来的较大的公共资源需求与公共资源有限供给及配置失衡的矛盾，人口非永久性的乡城迁移，城市规划的偏差与失调，使得“城市病”陷入迁延难愈或“旧病新疾”的困境之中。

这段文字重在强调？（　　）

A.“城市病”的生命成长周期

B.“城市病”症候的主要表现

C.“城市病”陷入困境的原因

D.“城市病”的“旧病新疾”

12.沿着什么样的法治道路前进，直接关系社会主义法治建设的成败。世界上没有放之四海而皆准的法治模式。如果脱离本国实际照抄照搬别国的法治模式，就会对经济社会发展产生消极作用。实践中，有的国家就是因为简单照抄照搬别国的法治模式，结果不但没有实现善治，反而增加了社会不稳定因素。法治是现代国家治理的基本特征和根本保障，任何一个国家进行法治建设，都必须探索适合自己的法治道路。

这段文字意在说明？（　　）

A.法治道路直接决定法治建设成败

B.法治建设离不开本国的法治实践

C.应坚定探索适合自身的法治道路

D.没有放之四海而皆准的法治模式

13.虽然从理想状态来看，新媒体多样化的分发平台的确可能使过去被媒体排除的某些内容进入到公共信息分发平台，进入公众视野，这有助于信息环境的多样化。但是，无论是社会化媒体中的“鼠标投票”，还是机器的算法，都难免会造成信息被遮蔽。

上述材料意在说明？（　　）

A.多样化的分发平台能使公众获得比过去更多的信息

B.新媒体分发平台对传播秩序产生了举足轻重的影响

C.多样化的新媒体分发平台有助于信息环境的多样化

D.再多样化的新媒体分发平台也无法避免信息被遮蔽

14.海洋是陆域通过流域的自然延伸，在海洋开发活动中，海洋捕捞、海上运输、海洋矿产开发和海水养殖等生产环节是在海域和流域共同完成；而海盐业和海水利用等则完全是在陆域上完成所有生产环节。此外，现代科学技术发展在推动海洋科技进步、海洋产业发展的同时，海洋高新技术的发展以及新产品的出现，也促进了流域科技进步和相关产业的发展，海陆产品通过这种技术延伸得到互动发展。

这段文字意在说明？（　　）

A.海洋经济与流域经济空间布局的依赖性

B.现代科技的发展推动了海陆经济的进步

C.海洋经济与流域经济在产业上相互交错

D.现代科技的发展促进了海陆经济的交汇

15.随着生产的发展，人们的分工越来越细，科学与文学逐渐分开，形成了“科学界”、“文学界”，如今，分工更细了，研究科学的人，一辈子只限于某一学科、某一专业以至某一专题。这样，“隔行如隔山”，常使人的视听囿于很小的天地，成为分工的奴隶。

这段话直接支持了这样一种观点，即（　　）。

A.生产的发展，导致“科学”和“文学”的分开

B.文与理密不可分，学文的应该懂点“理”，学理的应该懂点“文”

C.文理分科是必要的，但各自不应画地为牢，研究者应该文理兼通

D.要同等地对待文科和理科，既不能重文轻理，也不应重理轻文

16.智慧教育环境不是一个割裂的教育空间，而是通过网络将学校、家庭、社区、博物馆、图书馆、公园等各种场所连接起来的教育生态系统。学习不应该固定在教室和学校，而应回归社会和生活，发生在任何有学习需求的地方。智慧教育环境下的学习将走向泛在学习。泛在学习不是以某个个体（如传统学习中的教师）为核心的运转，而是点到点的、平面化的学习互联。“泛在”包含三个方面的内涵，即无处不在的学习资源、无处不在的学习服务和无处不在的学习伙伴，最终形成一个技术完全融入“学习”的和谐教育信息生态。

这段话主要介绍了？（　　）

A.无处不在的开放、按需学习

B.学习将走向泛在学习

C.智慧教育环境具有泛在性

D.智慧教育环境是和谐教育信息生态

17.“微阅读”，是伴随手机短消息、网文、博文的出现而兴起的一种阅读方式。随着智能手机、平板电脑、电子阅读器等在家庭中的普及，少年儿童的“微阅读”渐成趋势。尽管关于“微阅读”价值的认定还处于争论阶段，但碎片化的信息导致碎片化思维这一结论显然是成立的，而且已经有了不少例证。如果过度沉溺于“微阅读”，其实用性和消遣性会在无形中消解少年儿童阅读时的沉潜心态，从而影响到少年儿童对知识的吸收。

这段文字意在（　　）。

A.揭示促使“微阅读”兴起的前提条件

B.说明“微阅读”在少年儿童中渐成趋势

C.提醒少年儿童不要被“微阅读”所掌控

D.剖析“微阅读”对社会知识传承的影响

18.行政处罚不是为罚而罚，行政处罚法是为了规范行政处罚的设定和实施。依据处罚与教育相结合、过罚相当等基本原则，对于故意扰乱交通秩序、严重违法的行为，确实应该给予严厉处罚。但对于轻微、对社会没什么危害性的违法行为，若事事都处罚，会加大交通运输从业人员负担，反而不符合规范市场秩序、更好地促进社会稳定等执法理念的要求。同时，也会降低违法行为人受到行政处罚后的耻辱感，达不到处罚与教育相结合的目的。

这段文字讨论的问题是？（　　）

A.如何让违法行为人感受到执法的温度

B.如何科学认定轻微违法行为

C.是否应对所有违法行为进行处罚

D.处罚标准是否应作出调整

19.2020 年 4 月，在航空工业飞机强度研究所，新舟 700 飞机顺利完成了全机静力首项试验，标志着新舟 700 飞机全机静力试验正式拉开了帷幕。全机静力试验是首飞前必须经历的“大考”，将对飞机设计、制造等环节予以验证，为首飞提供重要保障，是研制中最为重要的全机试验。试验中加载过程平稳，加载精度满足任务书和大纲要求，测量数据完整有效，得到了试验委托方的认可。新舟 700 飞机全机静力试验的开门红，也为后续工作打下了一个良好的开端。

这段文字意在强调？（　　）

A.新舟 700 飞机全机静力首项试验顺利完成

B.新舟 700 飞机首项静力试验正式拉开帷幕

C.静力试验是新舟 700 飞机最为重要的试验

D.新舟 700 飞机首项试验测量数据完整有效

20.近年来，农村基础设施短板得到加快补齐，越来越多农村实现环境美化、水源净化、道路硬化。在一批批小而精、小而美、小而实的农村小型工程中，广大乡村建设工匠大显身手，发挥了重要作用。但与城市相比、与“宜居宜业和美乡村”目标相比，农村建设在规划、管理等方面仍存在一定差距。我国亟须培养一支具备一定技术水平的乡村建设工匠队伍，以提高农村建设质量。

这段文字旨在强调？（　　）

A.乡村建设中存在的问题

B.技术为乡村管理提供支持

C.培育乡村建设工匠队伍的重要性

D.乡村工匠队伍建设举步维艰

21.作为高铁大国，为什么我们还要研发高速磁悬浮？从技术上来说，高速磁悬浮具有高速快捷、安全可靠、运输力强、绿色环保等多种优势；从应用场景来说，尤其是在大力推动城市群建设、推动区域协同发展的今天，我们对更高速度的运输系统也存在着更强的需求。但高速磁悬浮是否会取代现有高铁网络？答案并非如此。在可预见的未来，人们倾向于认为，_____，它可以填补飞机和高铁之间的速度空白，满足人们的出行需求。

填入横线处最恰当的一项是？（　　）

A.磁悬浮技术应用最终能与现有铁路体系兼容

B.高速磁悬浮会对现有交通网络形成重要补充

C.磁悬浮技术能让列车获得“飞”一样的速度

D.高速磁悬浮必将成为战略性新兴产业制高点

22.科技创新是具备了现代科学知识的智慧头脑思想碰撞的产物，只有在思想观念的交流和相互激荡中才能激发出创新的活力。因此，科技创新中心往往因世界交流枢纽地位的变化而变化，唯有保持开放才能有创新的可能空间。_____。要建立创新型国家，不仅要坚持自主创新是第一动力，而且必须坚持全方位对外开放，推进更高水平的开放，不断提高“引进来”的吸引力和“走出去”的竞争力。

填入画横线部分最恰当的一项是？（　　）

A.只有坚持自主创新，才能从世界产业变革中的参与者变为主导者

B.要持续放宽外资市场准入，引导外资更好融入我国国民经济循环

C.对外开放有利于统筹优质资源，发挥稳定产业链、供应链的作用

D.由此，我们也就能够更加深切地理解改革开放的必要性和重要性

23.民政部每年公布的结婚率与离婚率，实际上是粗结婚率和粗离婚率，即以结（离）婚对数除以当期平均人口数。这两个指标数据容易获得，计算简便，能够反映出一定时期内人口婚姻事件的发生频率。但是，_____，因而计算结果会受到人口年龄结构的影响。如果非适婚年龄的人口比重不断增加，那么即使适婚年龄人口中的结婚水平和离婚水平没有发生变化，也会使粗结婚率和粗离婚率呈现出下降的趋势。

填入画横线部分最恰当的一项是？（　　）

A.指标计算时未考虑人口变动抽样调查数据

B.这种指标并不能反映人口真实的婚姻状况

C.婚姻事件只在一定年龄范围内的人口中发生

D.这种计算方法并未排除当期非适婚年龄人口

24.丝绸之路连通了亚洲各国，各种文明在交流互鉴中互通有无、携手前行，饮食是其中重要的一部分。人类从荒昧走向文明，学会驯化动植物是成因之一；文明的发展与繁荣，则在于这种技艺的传播与改进。原产于西南亚的小麦和大麦沿东西向传播，支撑起亚欧非无数个古典文明；诞生于中国的稻米，至今仍哺育着世界近一半的人口；现在餐桌上常见的玉米、大豆、马铃薯、西红柿、黄瓜等，都是从初始的驯化地沿着贸易路线最终遍布全球的。换言之，_____。

填入画横线部分最恰当的一项是？（　　）

A.饮食的发展史与文明的发展史有着相同的脉络

B.亚洲人民在饮食文明传播方面做出了积极贡献

C.世界各地的饮食中镌刻着文明的印记

D.美食将亚洲乃至世界连成了一个整体

25.《中华人民共和国个人信息保护法》首次在法律层面构建了相对全面的个人信息跨境流动制度，这一制度需要兼顾多重面向与利益。一方面，个人信息跨境流动已经成为我国数字经济发展的迫切要求。根据预测，2025 年我国数字经济规模有望跃居全球首位，可达人民币 60 万亿元，_____，数字产品或服务的供给、交付均需清晰的数据跨境制度指引。然而另一方面，地缘政治冲突加剧，世界数字大国间博弈，不同经济体主导的数据流动框架竞争日趋激烈，数字贸易保护主义抬头，导致数字经济发展面临的国际环境更加复杂。

填入画横线部分最恰当的一项是？（　　）

A.全球贸易发展促成海量数据的跨境流动

B.个人信息跨境流动成为数字贸易之必需

C.不同数据蕴含的价值和主权属性并不相同

D.本法为个人信息跨境流动确立了基本框架

26._____。人们通常认为菊花只枯不落，但是不看尽“寿客金英”，怎可知黄花也可遍地金？跳出教条的藩篱、突破程式化思维，多察实情、多听心声，拥抱广阔的社会生活，我们把握的将是多元多变的实际，赢得的则是更有价值的人生。

填入画横线部分最恰当的一项是？（　　）

A.博观而约取，厚积而薄发

B.欲穷千里目，更上一层楼

C.不识庐山真面目，只缘身在此山中

D.操千曲而后晓声，观千剑而后识器

27.职业病的机理和发生规律的基础研究是许多工作推进的基础。当前对职业病的认定仍然停留在 2013 年制定的《职业病分类和目录》，10 大类 132 种，以呼吸系统、皮肤、眼睛、耳鼻喉口腔等为主。但随着我国经济转型升级，新技术、新材料的广泛应用，新业态的产生，新的职业危害因素不断出现。与工作相关的肌肉骨骼系统疾病和心理健康等职业健康问题已引起广大劳动者和社会各界的广泛关注。_____，如何认定、如何核查、如何治疗都是我们不得不面对的问题。

联系上下文，填入横线处最恰当的是？（　　）

A.新的职业危害引发的安全与健康问题

B.新的经济形势下职业病的分类和目录

C.经济转型期职业病的机理和发生规律

D.职业病的出现与新业态新技术的关系

28.每个人在自己的现实世界之外，还拥有一个虚构的世界，很多的情感、欲望和想象都存放在那里，期望被叫醒。电影、文学、音乐、美术，所有形式的艺术如同叫醒闹钟，让人们虚构世界里的情感、欲望和想象获得起床出门的机会。然后，虚构世界开始修改现实世界，现实世界也开始修改虚构世界，这样的相互修改之后_____，并且存储在记忆之中。

填入横线处最恰当的是？（　　）

A.现实世界更加丰富多彩了

B.虚构世界更加丰富多彩了

C.世界在不知不觉中变了模样

D.人生不知不觉丰满宽广起来

29.长江被誉为黄金水道，但滞留船舶压载水加大了海洋外来生物入侵的风险，作为我国入侵物中危害最大的两种水生植物，凤眼莲喜旱莲子草在长江流域大爆发，形成内陆水体荒漠化，对长江流域水生物多样性安全和生态系统健康造成灾难性影响。船舶噪音、船舶灯光、船舶排污、船舶冲撞和螺旋桨绞杀也是造成长江水生生物多样性丧失的重要因素。据长江海事局统计：从 1988 年至 2009 年，长江通航水道发生重大船舶污染事故 23 件，船舶污染成为长江通航水道水生物多样性损害的主要诱因之一。

最适合做这段文字标题的是？（　　）

A.水生植物与内陆水体荒漠化

B.长江流域的海洋外来生物入侵

C.长江船舶对水生生物多样性的影响

D.黄金水道面临船舶污染的严重威胁

30.当前人们对益智类玩具期望过高，如识字类玩具、数字类玩具就大受消费者的热捧。其实益智类玩具远未达到所宣传的效果，如搭积木的孩子往往会被认为空间推理能力强，数学逻辑思维好，但不少专家指出，搭积木的效果并没有那么神奇，孩子们只是从诸如球、小卡车和小斜坡中学到了关于重力、形状和运动的物理学知识。

最适合做这段文字标题的是？（　　）

A.一无是处的益智类玩具

B.益智类玩具的益处无多

C.被夸大的益智类玩具

D.益智类玩具的前途堪忧

31.谈到绚丽多姿的色彩，鸟类显然是自然界中的佼佼者。许多色彩鲜艳的鸟从食物中获得色素，但鹦鹉却非如此。最新一项对虎皮鹦鹉的研究提到，有新的证据解释这些鸟是如何产生特有的黄色、蓝色和绿色羽毛的。研究人员在虎皮鹦鹉的生长羽毛中鉴定出一种非典型的高表达基因，这种基因能生产鹦鹉身上的黄色素。研究者还发现，一些不能产生黄色素的长尾小鹦鹉的羽毛也有黄色到绿色到蓝色的颜色变化。

最适合作这段文字标题的是？（　　）

A.绚丽多姿的鸟类羽毛

B.食物给鹦鹉披上了五彩衣

C.鹦鹉羽毛的色泽变化

D.基因给鹦鹉披上了五彩衣

32.关于第一批人类如何来到美洲大陆，通常的说法是靠步行。在冰河时期，人们横穿了 1500 公里，从当时连接西伯利亚和加拿大北部的大片陆块迁徙过去。随着冰河期结束，这片称为“白令陆桥”的陆块成为白令海峡。然而，“陆桥说”已逐渐不再流行，一些迹象显示，人类有可能是顺着太平洋沿岸搭船前往美洲的。考古发现美洲有 14000 年历史的人类聚落，足以作为早期人们由出海口逆流而上、踏入内陆的佐证，例如位于俄勒冈州太平洋沿岸的佩斯利洞穴。现在，有更确切的证据表明，人类并未经由“白令陆桥”抵达美洲。

最适合做这段文字标题的是？（　　）

A.“白令陆桥”真的存在吗

B.人类航海史超出你想象

C.人类究竟是怎样来到美洲大陆的

D.考古发现再现远古人类迁徙路线

33.荆轲，那个“风萧萧兮易水寒，壮士一去兮不复还”的勇士，在我国历史上是个特有的文化符号。然而，在手游里，“荆轲”二字变成了刺客家族世代传承的名号；刘备变成了肩扛火枪身穿风衣的黑帮教父；“刺秦”的故事也被胡编乱造得南辕北辙……在手游里，几千年来人们熟知的历史人物变得面目全非。这对缺少历史知识的少年儿童来说很容易产生迷惑，历史在这里，真成了可以“被随意打扮的小姑娘”。

最适合做以上文字标题的一项是？（　　）

A.手游也需要尊重历史

B.手游不该“游戏”历史

C.对历史的演绎不能过火

D.历史不该被手游过度消费

34.1859 年，达尔文完成旷世巨作《物种起源》，随后着迷于对兰花的研究，他在一本关于兰花的著作中写到：“兰花结构的多样性都是基于同一个目的：一朵花接受另一朵花的授粉。在对兰花的研究中，几乎再没有别的事实让我如此震惊。”达尔文为何对兰花如此痴迷？因为研究形态多样的兰花，可以帮助他进一步完善自然选择和进化方面的理论，但是达尔文并没有找到他想要的答案，由此，兰花的起源、进化和多样性的形成，被达尔文称为“令人讨厌之谜”。一百多年来，全世界无数科学家不断致力于解开这一谜团，均未取得突破性进展。

最适合做这段文字标题的是？（　　）

A.《物种起源》的续篇

B.“自然选择论”的挑战

C.兰花进化的百年谜团

D.达尔文与兰花的传奇故事

35.《论语》“学而时习之”，其实是对“学”“习”这两种意思既有区别、但又密切相关的人类知识增进行为的表达，其外延远超过今天双音节合成词基础上形成的“学习”一词。《论语》中大量使用到“学”和“习”，“学”强调对典籍的理解与吸收、“习”强调在实践中去检验印证，故“学习”义为“学习并实践”。但是，汉代以后随着汉语词汇构成规律的变化，诸如《史记》《后汉书》等典籍所载“学习”一语已由先秦两个意义递进的单音节词组演变为双音并列式合成词，从而导致“学习”词义的缩小。讨论“学习”在《论语》中的原始本义，对于今天中国的教育振兴以及建构终身学习型社会将有所裨益。

这是一篇文章的摘要，最适合做这篇文章标题的是？（　　）

A.《论语》在当代的传承策略

B.词汇演变与社会发展的关系

C.《论语》中的“学”“习”观

D.汉代在经典传承中的重要地位

36.作为过往人类文学经验的解释者，文学思想史家既无法宣称某些论据材料专属于自己研究的范围，也不能完全据有某一种研究方法或理论范式，他们通常只是“材料”的“消耗者”与“方法”的“使用者”。因此，文学思想史研究的所谓“加法”，不仅意味着资料篇目的选取应该在更大范围内、更深层面上将与文学思想史关联的学术思想史、历史通史等内容纳入

研究视野，以重新审视文学思想史的材料来源，还意味着在研究范式的选择上要充分兼顾到文学思想史与相关学科的差异与互补。

对画线句子理解正确的是？（　　）

A.文学思想史家的工作意义不在于发现材料或发明方法

B.文学思想史家往往不具备发现材料或发明方法的能力

C.文学思想史家局限于人类文学经验层面而无法超越

D.文学思想史家在研究材料和研究方法上都有待更新

37.个人认为，电动汽车的部件品种应该由企业选择，市场来裁判。电池、电机、电控等部件的品种都很多，都应该由企业根据总体设计和市场进行选择，没有必要由标准来越俎代庖。欧、美、日法规当中低速电动车标准里面都没有限定电池，未排斥铅酸电池，而装有铅酸电池的中国品牌低速电动车畅销国外。因此，中国的低速电动车标准不应该限制铅酸电池。

文中“越俎代庖”的“庖”指的是？（　　）

A.装有铅酸电池的中国品牌低速电动车畅销国外的事实

B.欧、美、日法规里的中低速电动车标准

C.市场以及企业的总体设计

D.国内对低速电动车的限定

38.近代社会变迁剧烈，市民生活方式随着时代的更迭发生了较大的变化，部分民众通过纵向或横向的比较产生了新的认知，并尝试将这种认知渗透于笔记、日记等私人文稿，或者被官方、组织团体及社会调查者所记载，形成当代学人透视时代变化的文献。因此，引入“他者”对历史进行审视，不仅有利于研究者更好地体察时人的情感倾向，也有助于深层次理解

社会文化变迁中的个人和群体。

文中的“他者”指的是？（　　）

A.反映时代剧烈变迁的文献

B.关于民众生活记录的文献

C.社会调查者记载的私人文稿

D.饱含民众情感倾向的认知

39.“数字乡村”战略是“数字中国”建设的重要方面，发展数字农业、推进农业数字化对于做好“三农”工作有着重要意义。由于城乡差距，我国农村的网络基础设施和网民数量均落后于城市，但是在“十三五”期间，尤其是 2019 年、2020 年，农村网民规模和互联网普及率出现了非常显著的增长，远高于全国网民规模和互联网普及率的平均增速。这表明，我国城乡间互联网发展不均衡的现象已得到改善。

这段文字最后一句中的“这”指的是？（　　）

A.农村网络基础设施和网民数量均落后于城市

B.我国城乡间互联网发展不均衡已经得到改善

C.数字技术已持续渗透到社会经济的各个领域

D.农村网民规模和互联网普及率获得大幅提升

40.房子是用来住的，不是用来炒的。从理论上说，买房不是刚需，居住才是刚需。但为何“宁买房不租房”？这说到底还是因为权利：人们不仅在买“产”，也在买“权”。对物权之上的受教育权、养老保障、医疗等权利的需求，有时比居住本身还强烈。越是人口流动大、业态更新快的城市，这个问题越紧迫。以租购同权为特色的房屋租赁市场改革，正是抓住了

这一深层次的需求，尝试实现租屋供给不足和租屋赋权不足的双重解铃。

这段文字中“这个问题”指的是？（　　）

A.租屋供给不足的状况普遍存在

B.房价超出许多刚需的购买能力

C.对物权之上各项权利需求强烈

D.房子长期以来被视为增值手段

41.心脏病发展的最危险形式之一是所谓的心脏猝死现象，它可以在几分钟内发生。传统心电图只能记录心脏明显的变化，无法预测潜在的威胁。科研人员开发的早期诊断仪，可以更准确地测量心脏的电活动，监测心肌细胞的早期病理变化，以预防心脏猝死，而无需通过复杂的手术干预。这是研究人员首次找到早期心脏活动变化的无创诊断方法，无需心脏手术，也无需通过静脉插入电极。因为这种新设备不仅能实时提供超高分辨率心电图，而且还能记录 0.3 微伏以上的微电势，持续时间 0.1 微秒以上，而心电图仪无法做到这一点。

根据这段文字，下列哪项不是早期诊断仪的优势？（　　）

A.预测可能发生的心脏猝死

B.辅助心肌梗塞患者的治疗

C.实时提供超高分辨率的心电图

D.诊断过程中不会给患者造成创伤

42.CAR-T 全称嵌合抗原受体 T 细胞免疫疗法，是一种个性化的肿瘤治疗方法，其核心是 T 细胞，它们在协调免疫应答和杀死感染病原体细胞中起关键作用，是免疫系统的主力军。该疗法需要从患者身上抽血并分离出 T 细胞，在体外扩增后再次注入患者体内，经过体外改

造的 T 细胞，能够识别并附着在肿瘤细胞上的特定蛋白质或抗原上。目前最成功的 CAR-T 疗法是靶向 B 淋巴细胞上的一种称为 CD19 的抗原，它是癌变的 B 淋巴细胞上的抗原，在 B 细胞白血病和淋巴瘤中频繁表达，就像是一个能让 T 细胞找到癌细胞的路标。

关于 CAR-T 疗法，这段文字没有提及？（　　）

A.适用病症　　B.作用原理　　C.治疗过程　　D.潜在风险

43.近代帆船有两大源流：一是地中海。古埃及、迦太基、希腊、罗马，先后执造船业之牛耳。公元 1000 年以后，威尼斯的划桨大帆船，又快又结实，在地中海所向披靡。同时，阿拉伯人开始引入三角帆，比传统的四方帆更灵活，甚至可以逆风行进。桅杆也从一根增加到三四根。二是北海。一两千年前的北欧海盗引入龙骨+肋骨+叠层木板结构，特别结实，后来又发展出了速度慢的大容量货船。为了海上打仗射箭和扔石头压制敌人，他们在甲板上垒起了高楼，一层层往上盖，搞出了三四层甲板。

根据这段文字，下列说法正确的是？（　　）

A.古埃及的帆船首次使用三角帆

B.威尼斯的划桨大帆船有四根桅杆

C.北欧海盗的帆船使用的是叠层甲板

D.北海地区的大容量货船是希腊帆船的升级版

44.我们如果能够看到火星生命体的残骸，就说明这些生物体灭亡距离现在的时间还不长，它们的消失过程，正好是地球生命的诞生和发展阶段，两者的不同，恰恰说明了生命在宇宙中的无比脆弱。另一方面，随着地球内核的逐渐冷却，这种现象是无法避免的，火星将是地球的“将来”，火星的状态无疑会是未来地球的缩影，一旦到了那个时候，地球也将变得不

再适合生命生存，未来的人类将何去何从？这就是人类极力发展太空探索技术、开展深空探测的原因之一，这样会让我们对地球的未来、人类的未来有更加清醒的认识，同时也为寻找潜在的、适合人类生存的其他星球打下基础。

根据上述文字，下列选项不正确的是？（　　）

A.地球将来会不适合生命生存

B.未来，人类有可能生活在其他星球上

C.目前没有在火星上发现生命存在的残骸或者遗迹

D.火星上发现的生命体残骸意味着火星将适合人类生存

45.氧气是地球上所有生物生存不可或缺的物质，在某种程度上是生命存在的迹象。地外星球上是否也有这样一种生命存在的标志物呢？近日，研究人员发现，磷化氢或将是这种标志物之一。磷化氢只能通过极端厌氧生物产生，如：细菌、微生物等。这一特性使得磷化氢成为某一种生命的标志。磷化氢是地球上最臭最毒的气体之一，存在于粪便堆、沼泽深处等肮脏地方。这种沼泽气体高度易燃，能与大气中的微粒发生反应。如果某一地外星球的磷化氢含量与地球上的甲烷相似，该星球的大气中会产生一种标志性光波，被人们观测到。一旦证实岩石行星上存在磷化氢，将可确认该星球上存在生命迹象。

据此，如果某岩石行星上存在磷化氢，则该行星？（　　）

A.大气中有甲烷　　B.可能有氧气存在

C.有沼泽类环境　　D.应该有厌氧生物

46.汉代“爱国”的观念开始大量出现，标志着中华民族爱国主义的确定与形成。虽然这一时期的“爱国如家”观念主要针对官员，但这一命题本身就含有普遍的意义。到了晋代，“忠

贞爱国”作为一种政治道德，明确把先秦的忠贞思想与“爱国”结合在一起，显示出“爱国”的观念已深入人心。近代以来，有人说中国古代只知道忠君，不知道爱国，这是不符合历史事实的。

根据这段文字可以得出？（　　）

A.在汉代，“爱国”的观念已经深入人心

B.“爱国”观念是忠贞思想的进一步升华

C.在中国古代，爱国是先于且重于忠君的

D.在汉代和晋代，对官员都有爱国的要求

47.唐代陆羽在《茶经》里说茶出自炎帝神农氏，历代相传至唐。但“茶”作为汉字不见于《说文解字》，也不见于《尔雅》，更不见于甲骨文。若按清人认定的“荼”是“茶”的话，“荼”也不见于甲骨文。在《甲金篆隶大字典》里，“荼”最先出现在“楚帛书”（大约战国晚期）。虽然“茶”不是最古老的汉字，但茶作为中国最古老又原生的植物，则是可以肯定的。在佛教东传的寺院里，因为可能的药用、僧众的修行所需，从南北朝开始到唐代，茶及茶事已足以让人为它专门写一部百科全书《茶经》了。

根据这段文字，下列说法错误的是？（　　）

A.从南北朝开始到唐代，茶仅使用于宗教活动中

B.《茶经》认为茶文化自神农氏首倡绵延至唐代

C.“茶”作为中国的原产植物，可能有药用价值

D.作为植物的“茶”比作为汉字的“茶”历史久

48.谈及诺贝尔奖提名的历史，不得不提爱因斯坦。1905 年，爱因斯坦发表了 5 篇论文，

提出光电效应、狭义相对论、质能等效方程，并对统计力学作出了巨大贡献。1910 年，奥斯特瓦尔德便向瑞典科学院提名爱因斯坦获奖。尽管那个时代的瑞典科学院更加青睐实验物理学工作，对以思想实验为主的相对论持保留意见，但爱因斯坦仍先后被提名 62 次，终于在 1922 年荣膺诺贝尔物理学奖，可以说物理学的半壁江山都站在爱因斯坦的身后。

由以上材料不能推知？（　　）

A.爱因斯坦的狭义相对论代表了思想实验的最高成就

B.爱因斯坦在物理学方面的贡献不属于实验物理学领域

C.爱因斯坦对统计力学作出了巨大贡献

D.1905 年发表的论文是爱因斯坦获诺贝尔奖的基础

49.现代人的祖先智人，曾在很长时间内与丹尼索瓦人、尼安德特人生活在同一片大陆上。只有智人进化成现在的人类。越来越多的证据表明，现代人的基因组中仍然留存着许多尼安德特人和丹尼索瓦人的基因。这一切都要归功于近年来考古学和现代分子生物学测序的发展。从基因组的比对信息中，我们可以看到已经灭绝的尼安德特人、丹尼索瓦人与现代人之间密切的联系。

从这段文字可以推出？（　　）

A.丹尼索瓦人和尼安德特人之间的基因关系更为密切

B.丹尼索瓦人、尼安德特人与智人共同进化成现代人

C.尼安德特人与丹尼索瓦人出现在人类祖先智人之前

D.现代人身上有丹尼索瓦人、尼安德特人和智人的基因

50.智能社会是正在生成中的社会形态。有专家认为，智能社会的当下特征主要表现为网络

化或数字化，主要标志是人工智能技术在社会生活中的普遍应用，其远期图景则包括人之外的智能体等行动主体的兴起及相应的治理变革。以应对数字化的近期挑战为重心，承启未来智能形态的治理模式，是智能社会治理范式的合理方式。

根据该文段，下列对智能社会的理解最不准确的是？（　　）

A.智能社会是一种还未成熟的社会形态

B.智能社会是人类社会的网络化和数字化

C.智能社会中人工智能技术会普遍应用

D.智能社会将会发展智能形态治理模式

51.大量的人口流入给城市的发展带来了强大动力，也快速形成了超特大城市的发展红利。然而大城市社会福利分配的限制、发展带来的高生活成本以及区域间文化的巨大差异，让大量农村人口面临进得来、留不下的困境，而且远距离的流动也导致一系列社会问题。县域城镇化连接着农村人口生活的家乡以及工作的城市，具有距离、文化等优势，县域城镇化发展不仅能为农村人口提供更多发展机会，还能为农业转移人口提供城镇化水平的社会服务，让农村人口在参与城镇化建设过程中真正享受其成果。

这段文字接下来最可能讲的是？（　　）

A.人口的自由流动是城镇化的基础

B.发展区域城市建设吸引人口回流

C.城市的发展红利应为建设者们共享

D.县域城镇化需要实事求是精准施策

52.肌肉训练有哪些好处？肌肉训练的好处之一，在于肌肉训练比有氧运动更有助于预防心

脏病。美国爱荷华大学一项大型研究表明，只要保证每周约一小时的肌肉训练，就可以降低患心脏病的风险。另外，根据“世界有氧运动之父”肯尼斯·库珀博士的经验和库珀有氧运动中心的大量研究，随着年龄的增长，我们的肌肉张力和力量与年龄成反比，在慢慢走下坡路，此时要想抗衰老，肌肉和力量的训练很重要。

紧接在这一文段后面最有可能讨论的内容是？（　　）

A.哪些方法可以有效抗衰老

B.该如何训练肌肉和力量

C.有氧运动如何预防心脏病

D.老年人应如何锻炼肌肉和力量

53.没有什么渴求比求知更加理所当然。我们试着用各种各样的方法去接近它，当理性推理不足时，我们便运用经验。经验是一种比较愚钝的方法，当然它来得也简单。但是真理是如此伟大，因此我们不能轻视每一条通向它的道路。理性有如此多的形式，以致我们往往不知道从哪里下手。我们的经验也有不少形式，我们从事件的相互对比中得出的结果，往往是不可靠的，因为事情永远不可能相同。

紧接在该文段之后最可能讲述的内容是？（　　）

A.应该坚持理性之路去求知

B.经验具有个体性和多样性

C.以往的经验是不可靠的

D.理性推理和经验结合起来求知

54.作为新型生产要素，数据已成为数字化、网络化、智能化的基础性资源，并快速融入生

产、分配、流通、消费和社会服务管理等各环节。通过数据，可以更好地理解自然和社会的运行规律，推动生产力发展，优化生产关系，促进国家和社会治理。但数据并非自在之物，而是人类协作与互动的结果。数据不仅承载着个人、市场主体与国家的大量信息，关系到公民个体人格权益、市场主体财产权益以及国家安全和社会公共利益，还呈现出不同于传统知识产权的全新特点。如何既鼓励数据的充分流通利用，又通过制度设计进行科学合理的权益配置和风险防控，就成为信息时代制度创新的重大课题。

关于数据，接下来最不可能谈的是？（　　）

A.与传统生产要素的区别

B.流通中涉及的权益主体

C.流通中风险产生的原因

D.对相关制度创新的要求

55.所谓生态产品价值实现，是要使生态系统为人类提供的产品和服务的潜在价值以货币化的现实价值在市场上得到显现和认可。当前能够在市场上显现的生态产品价值一般是消费性直接使用价值，除此以外的生态产品价值，往往难以得到市场的识别和认可。因此需要一定的机制设计，使得生态产品价值以现实价值的形式在市场上得到全面的显现。

接下来最可能说的是？（　　）

A.生态产品价值实现的定义

B.生态产品价值实现的社会意义

C.生态产品价值实现机制的构建

D.生态产品显性价值和潜在价值的区别

56.①由于亮度与光的强度成正比，因此行星看起来比恒星更亮

②当我们仰望星空时，或许能分辨出哪一颗是恒星，哪一颗是行星——闪烁的是恒星，不闪烁的是行星

③有趣的是，行星并不发光，而是反射恒星的光，但是从地球上看时，行星显得比恒星更亮

④而我们看得到的行星距离地球相对较近，折射较少

⑤这主要与行星和恒星到达地球的视距离有关，因为行星离地球较近，所以我们的眼睛感知行星的光的强度比离地球较远的恒星要高得多

⑥这是因为绝大多数恒星离地球非常远，来自恒星的光经历多次折射，光速不断变化，因此产生了这种效果

将以上 6 个句子重新排列，语序正确的是？（　　）

A.②⑥④③⑤①　　B.②④⑥③①⑤

C.③⑤①②⑥④　　D.③①⑤②④⑥

57.①这种观念意识即“中和”。所谓“致中和，天地位焉，万物育焉”，展开了中华民族一幅内含阔大想象的宇宙图景

②“尽善尽美”，要求美的原则与善的原则相伴而行，美感经验与价值理念一体交融

③就礼乐关系而言，礼强调道德仪式对日常行为的规范，然而这种规范如果不是仅流于形式，就必须从内心获得情感的力量，实现内化的完成

④就中华美育传统而言，美与善的关联性要远远大于差异性

⑤总之，中华美育精神，讲求审美与道德的统一，二者统一于人格教育之中

⑥乐呈现为愉悦的感性经验品格，然而这种愉悦本身，却为一种观念意识的直观呈现

将以上 6 个句子重新排列，语序正确的是？（　　）

A.④②⑥③⑤①　　B.②④③⑥①⑤

C.④③②⑥①⑤　　D.②①③⑥⑤④

58.①到了两汉魏晋时期，注经的人数大大增多，这其中出现两位具有代表性的人物。一个是王弼，另一个是河上公

②他们两个人走的是不同的路线。王弼的注解深得上层的喜爱。河上公的注解则在民间流传甚广

③最早为《道德经》作注的大概是战国时期的韩非。他著有《韩非子·解老》

④《道德经》自问世以来，在历朝历代都拥有一群“铁粉”，他们不仅读，还为之做注

⑤不仅如此，《道德经》还拥有四位“帝王级”粉丝，他们分别是唐玄宗、宋徽宗、明太祖和清代的顺治皇帝

⑥据学者统计，自先秦以来，参与注释和解读《道德经》者，至少有数百人

将以上六个句子重新排序，语序正确的是？（　　）

A.⑥③①②④⑤　　B.⑥⑤③④①②

C.④⑥③①②⑤　　D.④⑤③①⑥②

59.①如果四季流转是物理的节奏，那么黑夜与白昼的交替则关乎生理的节奏

②在没有充足照明条件的时代，人们只能“日出而作，日入而息”，顺应自然并不是为了表现“帝力于我何有哉”的情怀

③大家步伐一致，各地时间一致，才会觉得像一个“民族”、一个“国家”

④时间分配关乎“秩序”，这在古代中国的一统社会里面是很重要的，无论民间和官方都一样重视

⑤民间关心它，自有民间的理由，这是因为生产和作息需要

⑥官方重视它，也自有官方的道理，因为对作息时间的管理，在某种意义上说也是对社会秩序的管理

将以上六个句子重新排序，语序正确的是？（　　）

A.①③⑤⑥④②　　B.②①⑤⑥③④

C.③④⑤②⑥①　　D.④⑤①②⑥③

60.将下列句子重新排列，排序正确的是？（　　）

①文人雅集作为一种特殊的传播方式，属于点对点的精准传播，传播效果非常显著

②唐代长安拥有百万人口，是唐帝国最大的城市

③以文化景观为中心，构成了诗酒唱和的雅集空间和传播平台

④长安分布着众多的佛寺、道观、园林、亭台，乃至于街衢坊里等，是文人活动的公共社会空间

⑤对唐诗而言，长安的社会空间云集了文化素质较高的读者群，是唐代诗人猎取功名与诗酒雅集的双重舞台，也是诗歌最为理想的传播空间

A.②③⑤①④　　B.②⑤④③①

C.②④③⑤①　　D.②③④①⑤

第二章 逻辑填空

1.为什么讨论社会精英一定要涉及价值观呢？_____一个社会的良心是由社会精英打造与守护的。_____他们自己也很冷漠、漠不关心或放弃操守，_____这个社会的问题就非常严重了。

依次填入画线处最恰当的一项？（　　）

A.因为 要是 否则　　B.虽然 但是 因此

C.虽然 然而 那么　　D.因为 如果 那么

2.他多次邀请我去参观他的个人画展，事实上我对绘画不感兴趣，可_____，最后还是去了。参观过程中只能进行一些礼貌性的交流，对绘画的个人见解，只有_____了。

依次填入画线处最恰当的一项是？（　　）

A.受之有愧 让人见笑　　B.却之不恭 贻笑大方

C.盛情难却 自娱自乐　　D.受之有愧 见笑方家

3.尽管元宇宙有助于缩短时空距离，_____体验和认知的边界，但就算时空能够被多重“折叠”，加之人类寿命延长，人的生命毕竟还是有限的。互联网时代的各种“成瘾”已经成为现代社会的_____，游戏公司和社交平台也多因此_____。

依次填入画线处最恰当的一项是？（　　）

A.拓展 毒瘤 饱受煎熬　　B.拓展 顽疾 备受诟病

C.延伸 毒瘤 讳疾忌医　　D.拓宽 疾病 有苦难言

4.这个小镇已被列入第二批全国旅游产业发展特色小镇，G 省 100 个示范小城镇建设重点

项目名录，是工业、农业、少数民族文化的发展重镇。小镇的土司楼、土司祭坛、土司庄园等具有彝族文化符号的建筑_____，境内有面积超过 50 平方公里的国家森林公园，旅游资源十分丰富，少数民族文化底蕴十分_____，旅游发展基础条件较好。

依次填入画线处最恰当的一项是？（　　）

A.随处可见 深邃　　B.无所不有 厚重

C.比比皆是 深厚　　D.星罗棋布 浓厚

5.在传统企业中，体验管理的真正落实经常面临着一堵看不见的“墙”。这堵墙就是固有的组织架构。各部门按照职责和分工_____地进行着营销、研发、生产、服务，分工明确而又_____。但消费者体验的问题和痛点往往来源于融合触点，例如，某项服务流程的优化由体验管理部门识别并发起，但需要跨越战略部门、技术发展部门、服务提供部门、财务部门等多部门来共同解决，而各个部门的职责和分工就成为体验迭代中的最大障碍。

依次填入画线处最恰当的一项是？（　　）

A.有条不紊 壁垒森严　　B.井然有序 自成一体

C.有板有眼 壁垒分明　　D.环环相扣 固若金汤

6.依次填入下列画横线部分的字，正确的一组是（　　）。

①当下各大博物馆借助 AI、VR 等新技术、新传播形式，打造智慧博物馆，让博物馆里陈列的文物变得有深度、有温度、有亲_____力，吸引了越来越多的人走进博物馆。

②以活性_____为原材料雕刻打磨的艺术摆件，不仅可以净化空气，还极具欣赏价值。

③新征程上，要深入实施新时代人才强国战略，加快建设国家战略人才力量，抢占科技竞争和未来发展_____高点，把科技自主权、发展主动权牢牢掌握在自己手中。

A.和 碳 制　　B.和 炭 制　　C.合 炭 置　　D.合 碳 置

7.教师_____有扎实的学问、有渊博的知识，能够引领学生走向知识的殿堂。走向知识的海洋，_____在为人做事上为学生做出_____。教师不能给学生讲的是一套，自己做的又是一套，而是要言行一致，_____，怎么说，就要怎么做。无论为学，还是为人，都要起到示范引领作用。

依次填入画横线部分最恰当的一项是？（　　）

A.既要 也要 表率 表里如一　　B.不仅 而且 榜样 身体力行

C.不光 也要 引领 莫衷一是　　D.不是 而是 模范 身先士卒

8.“信号升格”的行动目标，不单单_____于要在技术意义上实现网络信号本身的能级升格，还意味着进一步实现服务、保障以及感知与体验等_____的运行升格。这些“升格事项”本身，会与人们工作学习生活等不同领域的应用场景实现_____，转化为各类优质服务。

依次填入画横线部分最恰当的一项是？（　　）

A.限制 形式 转化　　B.满足 角度 融汇

C.体现 维度 升级　　D.局限 层面 对接

9.习近平总书记的重要讲话_____于中华优秀传统文化，深刻阐释经济和金融、短期和长期、发展和安全的辩证统一关系，推动金融系统大力弘扬中华优秀传统文化、坚持诚实守信、以义取利、稳健审慎、守正创新、依法合规，为金融业注入传承传统、积极向上基因，_____了中华优秀传统文化新的时代内涵。

依次填入画横线部分最恰当的一项是？（　　）

A.根植 赋予　　B.耕种 授予　　C.种植 赐予　　D.培植 给予

10.在社交以及婚庆、拜师、祭祀等重要场所，喝茶作为一种重要礼仪传承至今。影响持久而深远。合作伙伴以茶会友、以茶敬礼，在谦和中达成双赢；师徒结对以茶见证、以茶敬师，在崇敬中升华情感；婚庆大典以茶祝福、以茶敬上，在和睦中见证幸福，谦和礼敬的处世哲学，在茶的推杯换盏中表达得_____，充分_____中国茶文化独特魅力。以此为载体也实现了中华优秀传统文化的传承。

依次填入画横线部分最恰当的一项是？（　　）

A.淋漓尽致 释放　　B.一览无余 挥洒

C.意犹未尽 展现　　D.意味深长 显露

11.数智时代发展银发经济，还需要进一步_____其数字化潜力，推进数字产品和服务的适老化，加快_____“接入、使用、知识”三道数字鸿沟，让老年人群在拥抱数字生活中拥有更多选择。

依次填入画横线部分最恰当的一项是？（　　）

A.引导 联结　　B.开拓 填充　　C.激发 弥合　　D.刺激 契合

12.近年来，绿色生产深刻变革。绿色消费_____，低碳节能蔚然成风，践行简约适度、绿色低碳的生活方式融入日常、一个人人、事事、时时崇尚生态文明的社会新风尚日益形成。

填入画横线部分最恰当的一项是？（　　）

A.承前启后　　B.炙手可热　　C.大行其道　　D.方兴未艾

13.佛教的传入和佛经的大量翻译在当时引起了震动，其震动所_____的文化领域和阶层极其广泛。

填入画横线部分最恰当的一项是？（　　）

A.包括　　B.影响　　C.波及　　D.包涵

14.在现实生活中，做事仅靠技术就能_____，做人则是一门弹性极强的艺术，讲求的是无法量化和复制的分寸感。

填入画横线部分最恰当的一项是？（　　）

A.如鱼得水　　B.独当一面　　C.游刃有余　　D.臻于佳境

15.目前，传统旅行社与在线旅游企业正在_____中融合发展，精品线路、个性定制团队游的出现已经改善了传统旅行线路的劣势，在线旅游企业线下产业的拓展升级了服务。

填入画横线部分最恰当的一项是？（　　）

A.博弈　　B.角逐　　C.较量　　D.竞争

16.针对不同人的不同问题和不同特点，不同单位出现的不同情况，采用不同的方法加以解决，就是_____，一把钥匙开一把锁。这是解决人们的思想认识问题，做好思想政治工作的基本要求。要做到这一点，必须对症下药，否则，问题的原因、性质和特点搞不清楚，就着手去解决，势必_____，甚至南辕北辙，_____。

依次填入画横线部分最恰当的一项是？（　　）

A.因地制宜 事半功倍 背道而驰　　B.有的放矢 事倍功半 适得其反

C.因势利导 无功而返 分道扬镳　　D.因人而异 误入歧途 得不偿失

17.在中华文明悠久的发展历程中，有很多典故是批评和讽刺形而上学思想方法的，如盲人摸象、_____、坐井观天、掩耳盗铃、揠苗助长、削足适履、_____等。

依次填入横线处最恰当的一项是？（　　）

A.孔融让梨 刻舟求剑　　B.郑人买履 画蛇添足

C.孟母三迁 守株待兔　　D.闻鸡起舞 项庄舞剑

18.科技排毒，是个时髦词儿，一些电影桥段提供了方法，比如：找个_____规避掉所有通讯设备，放空大脑。如此方法固然有效，但说到底是一种暂时的逃离。现实生活中，我们要工作要养家，假期有限，几个人能真正做到_____？逃离，不是最好的办法。

依次填入横线处最恰当的一项是？（　　）

A.栖息之所 比屋而封　　B.洞天福地 门可罗雀

C.世外桃源 与世隔绝　　D.海市蜃楼 离群索居

19.聊城是一座因水而成名的城市。明永乐九年重新疏浚会通河以后，聊城成为运河上南北往来的交通重地，史称“漕挽之咽喉，天都之肘腋”“江北一都会”。运河两岸，店铺鳞次栉比，作坊_____，街巷纵横交错，商品_____，一派繁荣的景象。

依次填入横线处最恰当的一项是？（　　）

A.浩如烟海 林林总总　　B.参差不齐 金碧辉煌

C.不胜枚举 美轮美奂　　D.星罗棋布 琳琅满目

20.集合了两代前辈“蛟龙”号和“深海勇士”号的研发力量，“奋斗者”号_____，在西太平洋最深处，_____中国“深蓝梦”的实现。

依次填入横线处最恰当的一项是？（　　）

A.不孚众望 目睹

B.众望所归 目击

C.不负众望 见证

D.不辱使命 看见

川量教育 CHUANLIANG EDUCATION

第二部分 判断推理

第一章 类比推理

1.墙倒众人推：乘人之危（　　）

A.无巧不成书：出类拔萃　　B.秋风扫落叶：势如破竹

C.针尖对麦芒：千钧一发　　D.疾风知劲草：一丝不苟

2.法律：法官：审判（　　）

A.领导：执行：决策　　B.音乐：艺术：欣赏

C.轨道：动车：行驶　　D.课堂：教师：育人

3.招聘：录用：培训（　　）

A.购票：安检：乘车　　B.充电：使用：报修

C.鼓掌：提纲：发言　　D.浇水：填土：施肥

4.镜片：眼镜：矫正（　　）

A.过滤器：空调：制冷　　B.导游：旅行社：游览

C.相机：记者：摄影　　D.酸奶：益生菌：消化

5.不孚众望：不负众望（　　）

A.拾人牙慧：独辟蹊径　　B.屡试不爽：屡试屡验

C.不胫而走：不翼而飞　　D.苦心孤诣：苦口婆心

6.飞机：机库：机场（　　）

A.课桌：桌椅：桌面　　B.药品：药盒：药箱

C.乘客：客车：车站　　D.汽车：车轮：车轴

7.压力：压强（　　）

A.势能：速度　　B.电势：电压

C.边长：周长　　D.重力：质量

8.信息科技：生物科技：科技（　　）

A.机械工业：智能工业：工业　　B.纺织产业：物流产业：产业

C.公共交通：城市交通：交通　　D.商品住房：保障住房：住房

9.颠倒乾坤：大开眼界（　　）

A.后会无期：呜呼哀哉　　B.三阳开泰：美人迟暮

C.至理名言：巴山夜雨　　D.平分秋色：重整旗鼓

10.（　　）对于举酒欲饮无管弦相当于拟人对于（　　）。

A.借代　云想衣裳花想容　　B.比喻　欲与天公试比高

C.夸张　春江水暖鸭先知　　D.衬托　俯首甘为孺子牛

11.风：风车：旋转（　　）

A.水：锦鲤：游动　　B.雷：闪电：暴雨

C.火：木柴：燃烧　　D.电：电车：行驶

12.劝君更尽一杯酒：西出阳关无故人（　　）

A.山重水复疑无路：柳暗花明又一村

B.晴川历历汉阳树：芳草萋萋鹦鹉洲

C.穿花蛱蝶深深见：点水蜻蜓款款飞

D.落红不是无情物：化作春泥更护花

13.民警：军人：法官（　　）

A.地铁：高铁：客运　　B.邮票：债券：纸币

C.政府：国家：议会　　D.辞书：字典：《康熙字典》

14.《庖丁解牛》:《庄子》(　　)

A.《鱼我所欲也》:《孟子》　　B.《谋攻》:《墨子》

C.《非攻》:《孙子》　　D.《劝学》:《孔子》

15.文字：汉字（　　）

A.判断：概念　　B.宇宙：恒星

C.中国：北京　　D.工人：矿工

16.廉颇：负荆：请罪（　　）

A.项羽：破釜：沉舟　　B.诸葛亮：草船：借箭

C.班超：投笔：从戎　　D.韩信：赤膊：上阵

17.前因后果：因果（　　）

A.内忧外患：忧患　　B.南征北战：征战

C.左顾右盼：顾盼　　D.有始无终：始终

18.审阅：校正（　　）

A.签收：承办　　B.部署：动员

C.成家：立业　　D.转发：评论

19.减速带：高速公路（　　）

A.电力系统：输电线路　　B.排气阀：电压力锅

C.云图：云层　　D.花岗岩：冰壶

20.水稻：粮食（　　）

A.地球仪：浑天仪　　B.玉器：印章

C.大篆：篆书　　D.显卡：存储器

21.扶贫：脱贫（　　）

A.植物：浇灌　　B.启动：汽车

C.锻炼：减肥　　D.选种：虫害

22.照相机：光学成像（　　）

A.相对论：飞机

B.控制变量法：留声机

C.人脸识别系统：专利

D.彩超：多普勒效应

23.豆：豆油：压榨（　　）

A.茶叶：茶水：冲泡

B.水泥：房屋：建造

C.布料：成衣：缝制

D.太阳：阳光：辐射

24.设计：修建：高楼（　　）

A.痛恨：打击：仇敌

B.热爱：学习：书本

C.体检：判断：病人

D.勘探：开采：石油

25.医生：北方人（　　）

A.工程师：建筑师

B.空调：电器

C.党员：中年人

D.熊猫：北极熊

川量教育 CHUANLIANG EDUCATION

第二章 图形推理

1.从所给的四个选项中，选择最合适的一个填入问号处，使之呈现一定的规律性（　　）。

A.A　　B.B　　C.C　　D.D

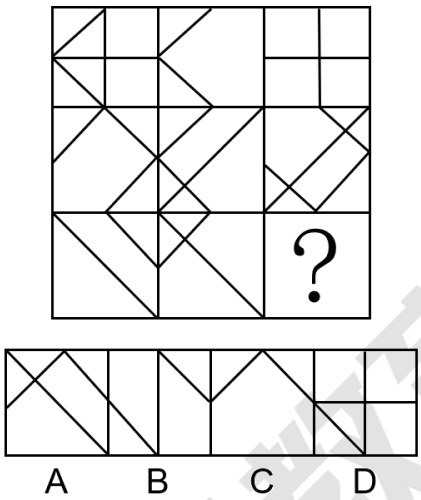

2.填入问号处最恰当的是（　　）。

A.A　　B.B　　C.C　　D.D



3.从所给四个选项中，选择最合适的一个填入问号处，使之呈现一定的规律性（　　）。

A.A　　B.B　　C.C　　D.D



4.从所给四个选项中，选择最合适的一个填入问号处，使之呈现一定的规律性（　　）。

A.A　　B.B　　C.C　　D.D

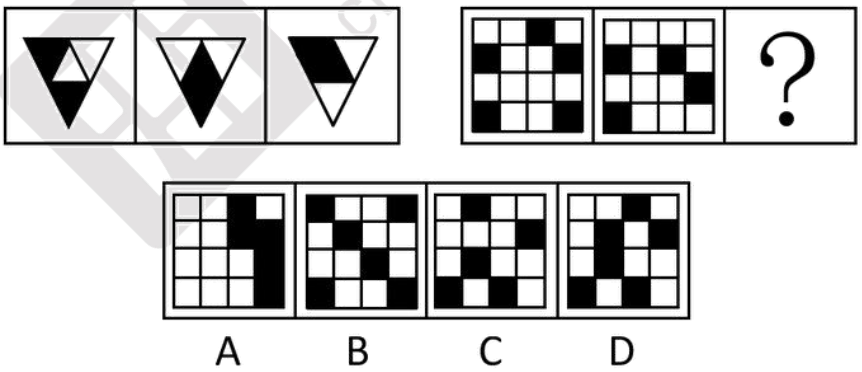

5.请从所给的四个选项中，选择最合适的一个，使之呈现一定的规律性（　　）。

A.A　　B.B　　C.C　　D.D

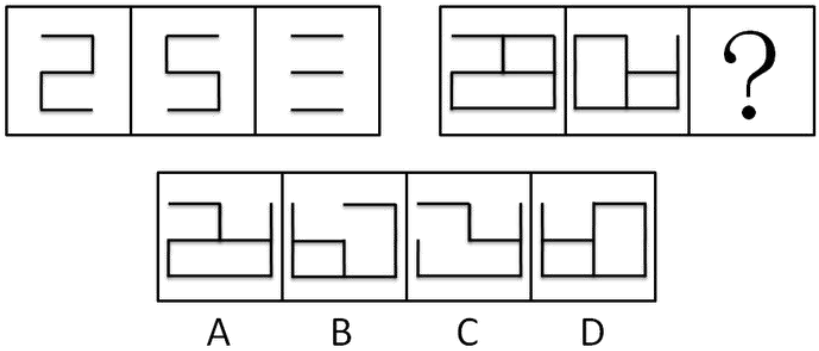

6.从所给的四个选项中，选择最合适的一个填入问号处，使之呈现一定的规律性（　　）。

A.A　　B.B　　C.C　　D.D



7.从所给四个选择中，选择最合适的一个填入问号处，使之呈现一定规律性（　　）。

A.A　　B.B　　C.C　　D.D

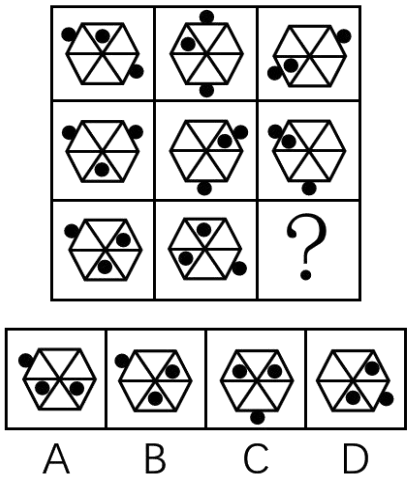

8.填入问号处最恰当的是（　　）。

A.A　　B.B　　C.C　　D.D

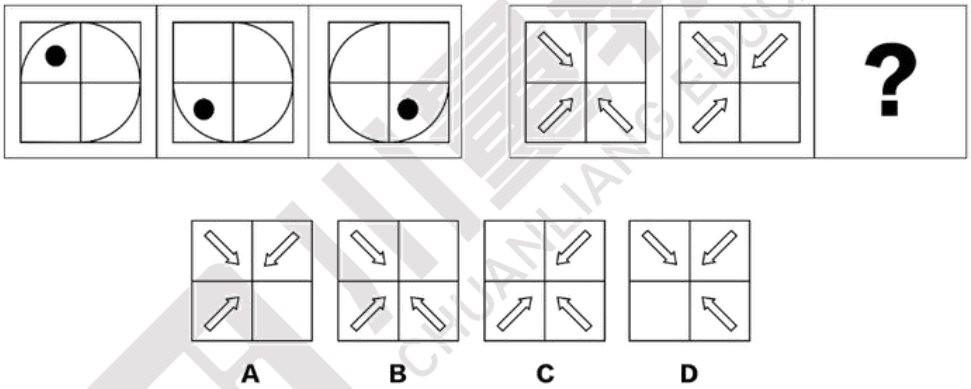

9.填入问号处最恰当的是（　　）。

A.A　　B.B　　C.C　　D.D

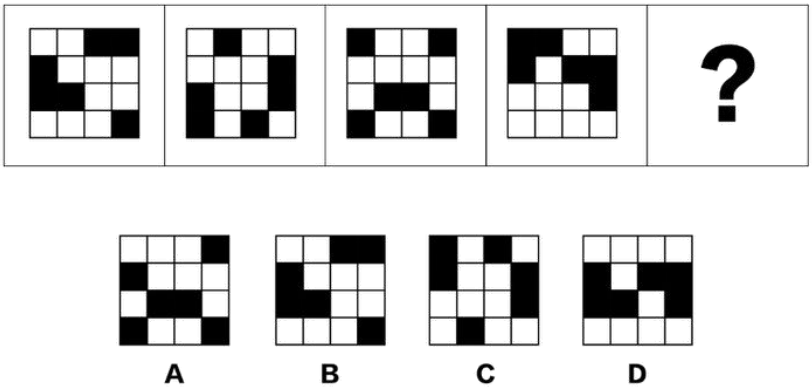

10.请从所给四个选项中选择一个最合适的选项填入问号处，使之呈现一定的规律性（　　）。

A.A　　B.B　　C.C　　D.D



11.根据所给图形的既有规律，选出一个最合理的答案（　　）。

A.A　　B.B　　C.C　　D.D

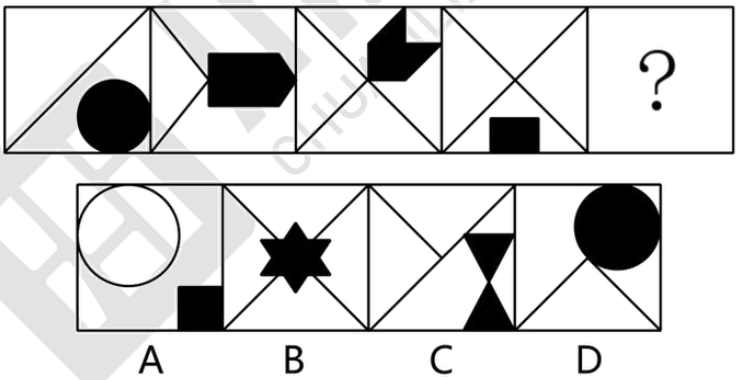

12.根据所给图形的既有规律，选出一个最合理的答案。（　　）

A.A　　B.B　　C.C　　D.D

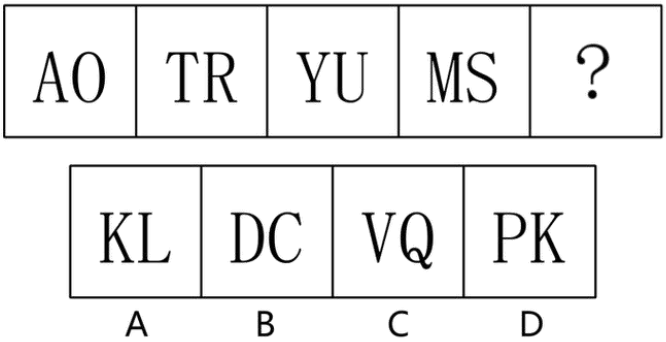

13.从所给的四个选项中，选择最合适的一个填入问号处，使之呈现一定的规律性（　　）。

A.A　　B.B　　C.C　　D.D

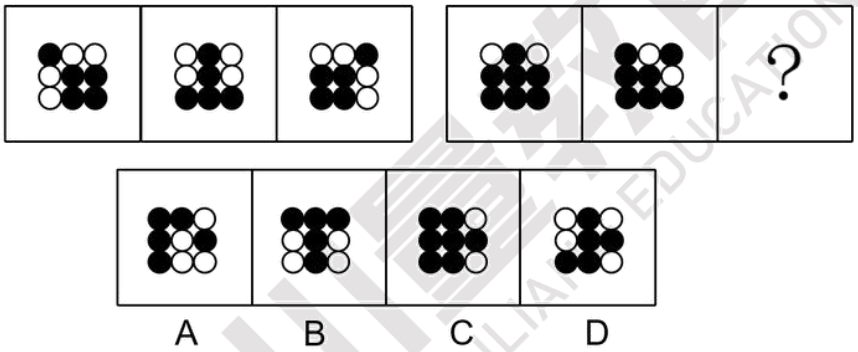

14.从所给的四个选项中，选择最合适的一个填入问号处，使之呈现一定的规律性（　　）。

A.A　　B.B　　C.C　　D.D

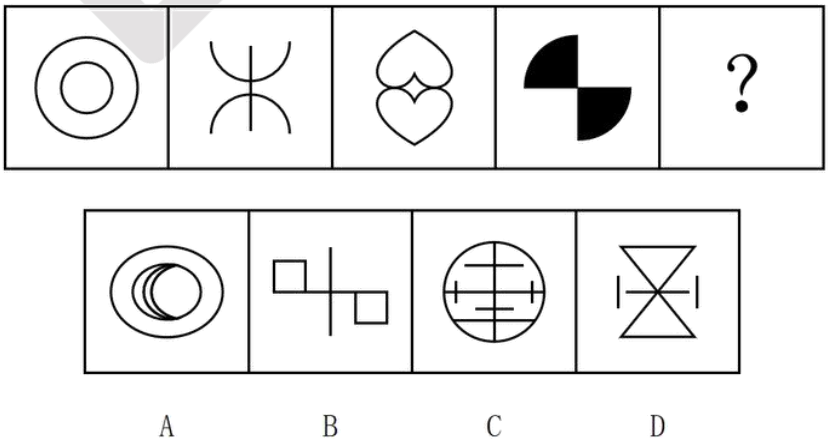

15.从四个图中选出唯一的一项，填入问号处，使其呈现一定的规律性（　　）。

A.A　　B.B　　C.C　　D.D

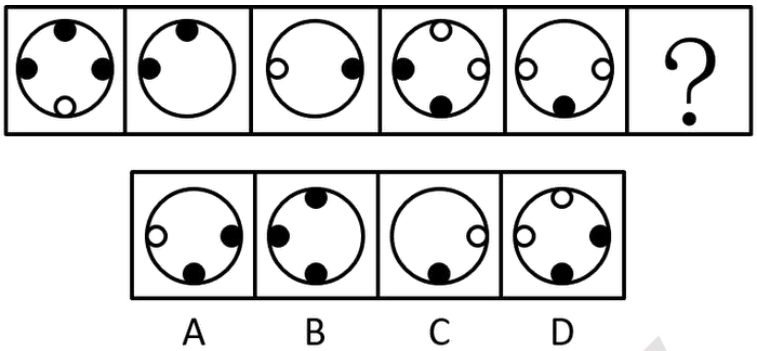

16.把下面的六个图形分为两类，使每一类图形都有各自的共同特征或规律，分类正确的一项是（　　）。

A.①②③，④⑤⑥　　B.①②⑥，③④⑤

C.①②④，③⑤⑥　　D.①④⑥，②③⑤

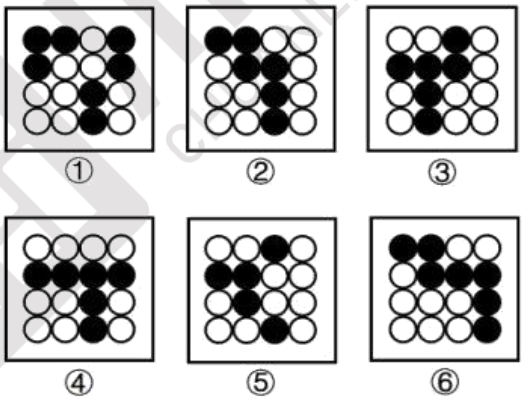

17.把下面的六个图形分为两类，使每一类图形都有各自的共同特征或规律，分类正确的一项是（　　）。

A.①②③，④⑤⑥　　B.①②⑤，③④⑥

C.①②⑥，③④⑤　　D.①④⑥，②③⑤

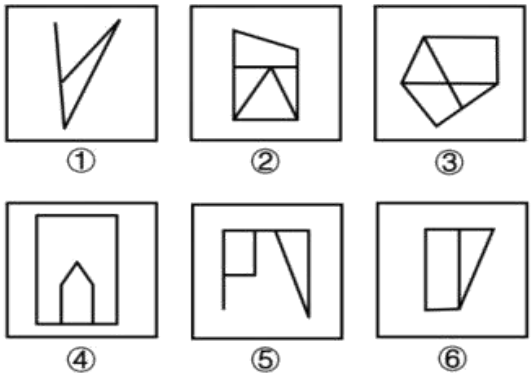

18.从所给的四个选项中，选择最合适的一个填入问号处，使之呈现一定的规律性（　　）。

A.A　　B.B　　C.C　　D.D

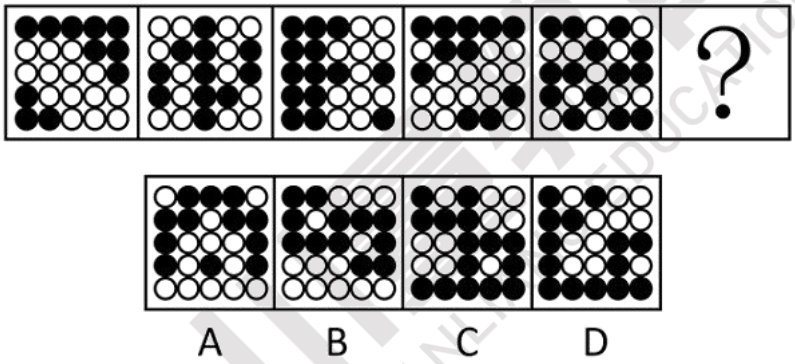

19.从所给的四个选项中，选择最合适的一个填入问号处，使之呈现一定的规律性（　　）。

A.A　　B.B　　C.C　　D.D

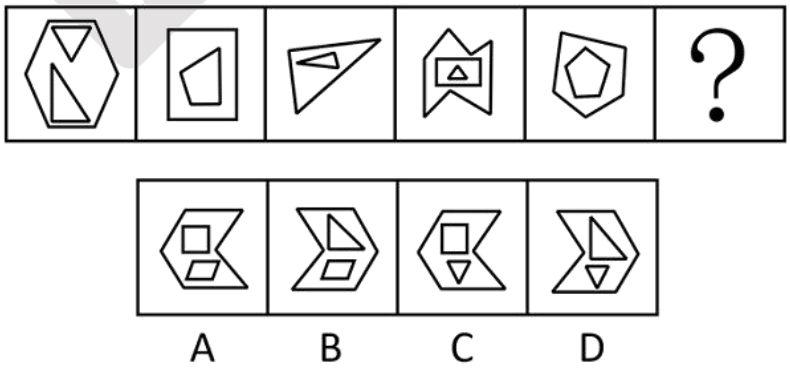

20.从所给的四个选项中，选择最合适的一个填入问号处，使之呈现一定的规律性（　　）。

A.A　　B.B　　C.C　　D.D



21.从所给的四个选项中，选择最合适的一个填入问号处，使之呈现一定的规律性（　　）。

A.A　　B.B　　C.C　　D.D

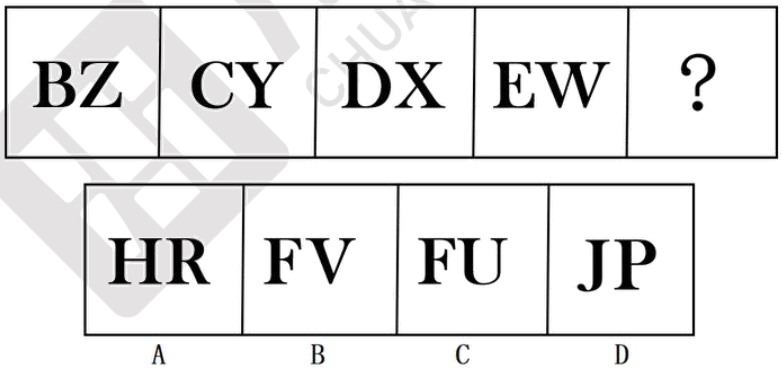

22.从所给四个选项中，选择最合适的一个填入问号处，使之呈现一定的规律性（　　）。

A.A　　B.B　　C.C　　D.D

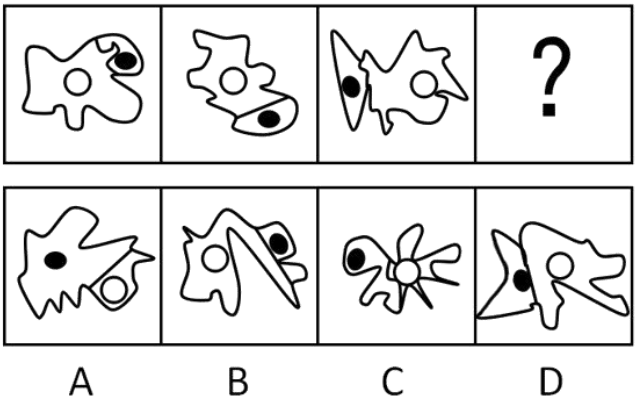

23.把下面的六个图形分为两类，使每一类图形都有各自的共同特征或规律，分类正确的一项是（　　）。

A.①②⑥，③④⑤　　B.①③④，②⑤⑥

C.①③⑥，②④⑤　　D.①④⑥，②③⑤



24.从所给四个选项中，选择最合适的一个填入问号处，使之呈现一定的规律性（　　）。

A.A　　B.B　　C.C　　D.D

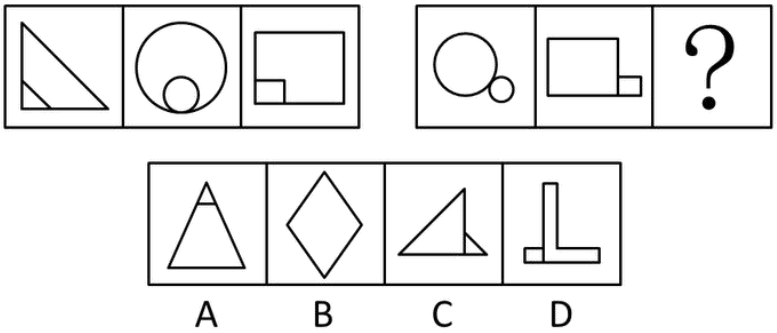

25.把下面的六个图形分为两类，使每一类图形都有各自共同的特征或规律，分类正确的一项是（　　）。

A.①③⑥，②④⑤　　B.①③⑤，②④⑥

C.①③④，②⑤⑥　　D.①⑤⑥，②③④

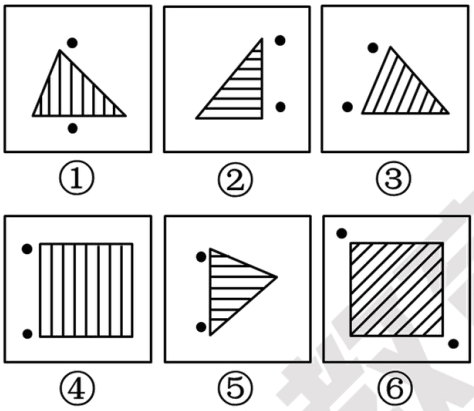

26.填入问号处最恰当的是（　　）。

A.A　　B.B　　C.C　　D.D

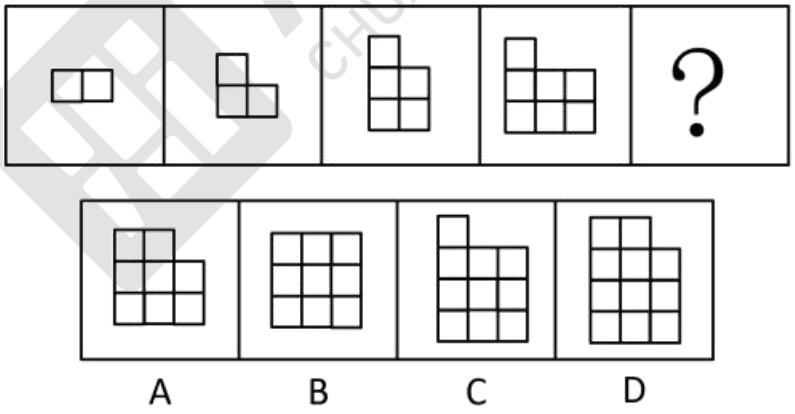

27.从所给的四个选项中，选择最合适的一个填入问号处，使之呈现一定的规律性（　　）。

A.A　　B.B　　C.C　　D.D



A B C D

28.从所给的四个选项中，选择最合适的一个填入问号处，使之呈现一定的规律性（　　）。

A.A　　B.B　　C.C　　D.D



A B C D

29.根据所给图形的既有规律，选出一个最合理的答案。（　　）

A.A　　B.B　　C.C　　D.D

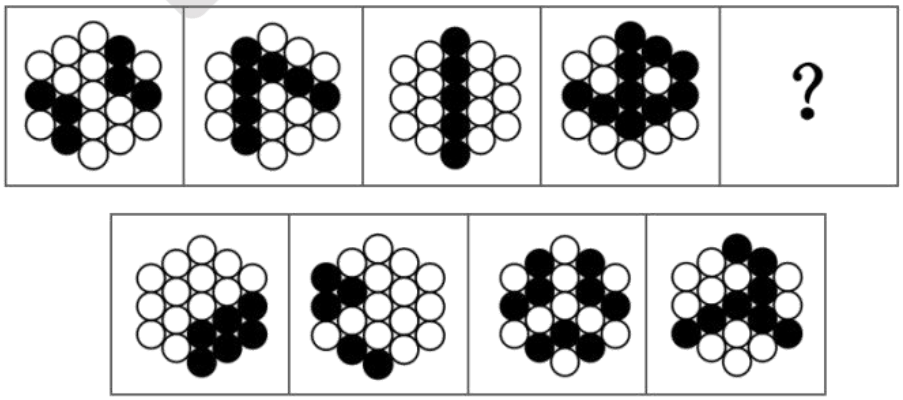

A B C D

30.把下面六个图形分为两类，使每一类图形都有各自的共同特征或规律，分类正确的一项是（　　）。

A.①②⑤，③④⑥　　B.①③⑤，②④⑥

C.①②③，④⑤⑥　　D.①④⑤，②③⑥

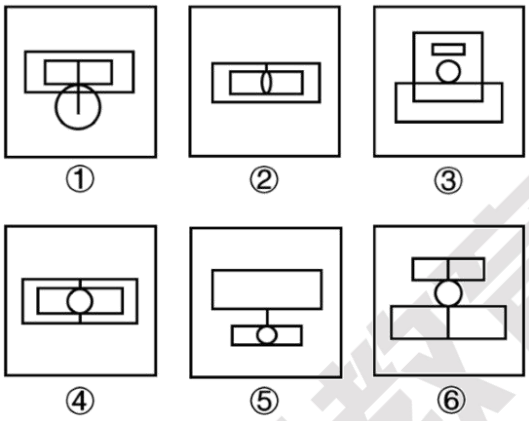

31.以下为 2 个正方体纸盒的外表面展开图，其折叠后不可能的是：（　　）。

A.A　　B.B　　C.C　　D.D

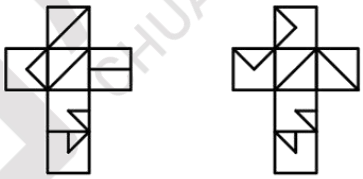

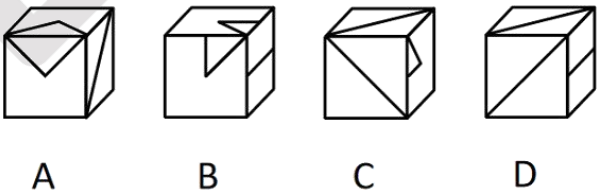

32.左图为某一零件的立体图形，右边哪一项不属于该立体图形的截面图？（　　）

A.A　　B.B　　C.C　　D.D

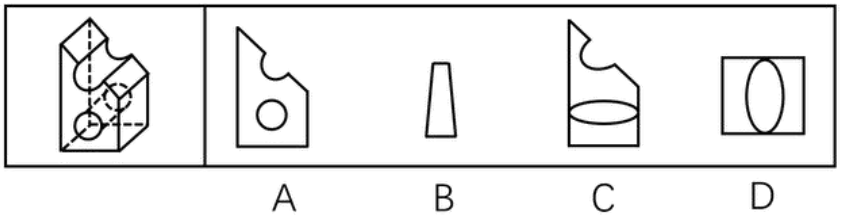

33.下图所示的榫卯结构体，与构件 1 能正确连接的是（　　）。

A.A　　B.B　　C.C　　D.D

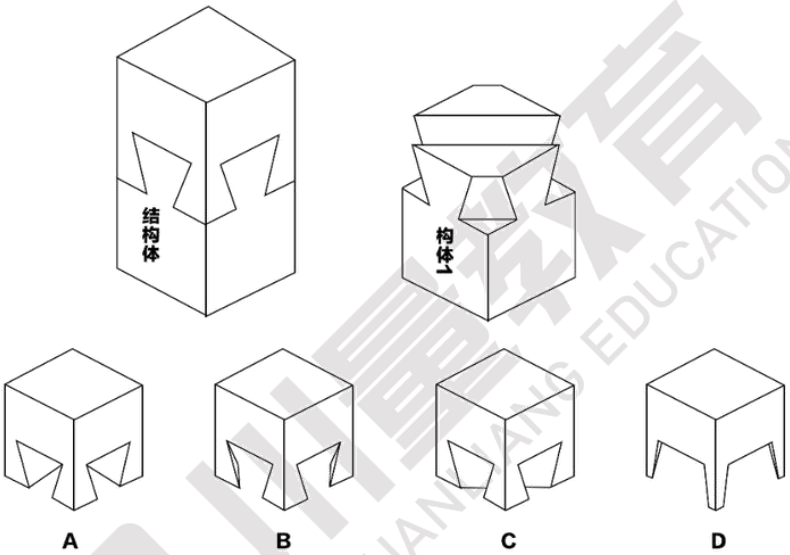

34.左图给定的是由相同正方体堆叠而成多面体的视图。该多面体可以由①、②和③三个多面体组合而成，以下哪项能填入问号处？（　　）。

A.A　　B.B　　C.C　　D.D

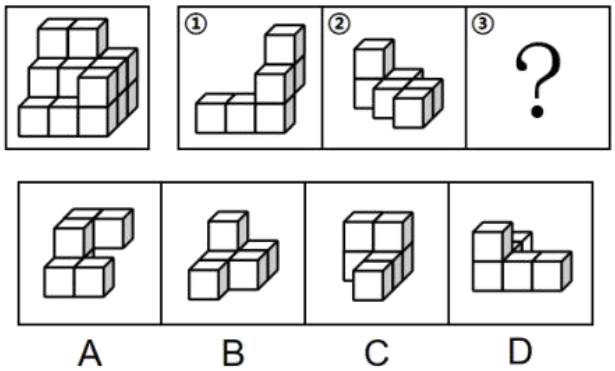

35.请从所给的这几个选项中，选择最合适的一个填在问号处，使之呈现一定的规律（　　）。

A.A　　B.B　　C.C　　D.D

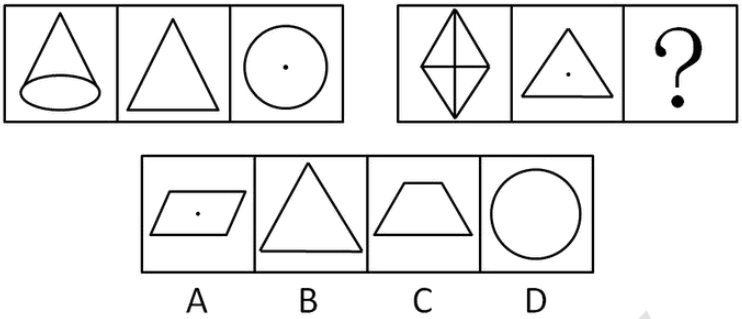

36.下面四个正方体纸盒的外表面展开图中，与其他三个折叠成的纸盒不相同的是（　　）。

A.A　　B.B　　C.C　　D.D

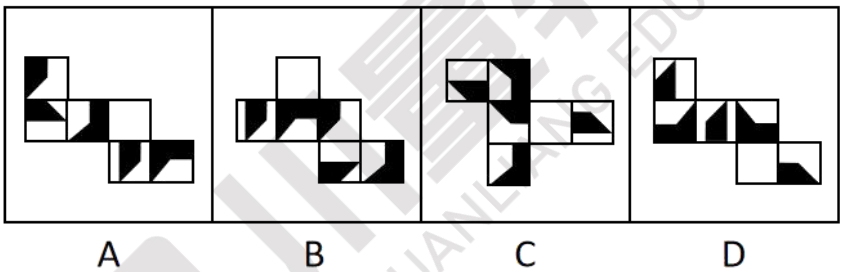

37.从所给四个选项中，选择最合适的一项填入问号处，使之呈现一定的规律性（　　）。

A.A　　B.B　　C.C　　D.D

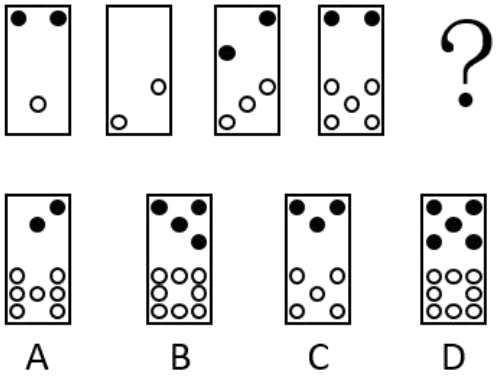

38.请从所给的四个选项中，选择最合适的一个填在问号处，使之呈现一定的规律性（　　）。

A.A　　B.B　　C.C　　D.D

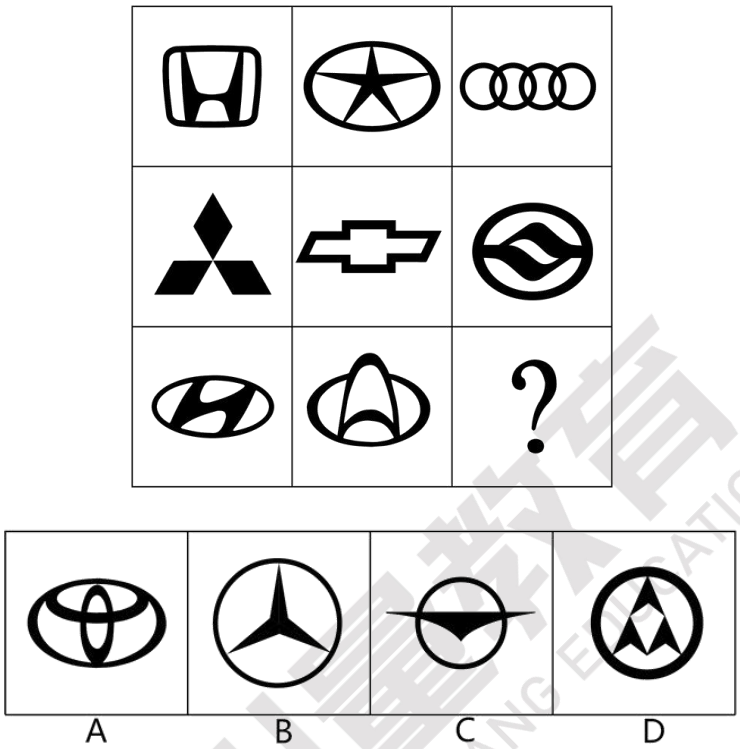

39.从所给四个选项中，选择最合适的一项填入问号处，使之呈现一定的规律性？（　　）。

A.A　　B.B　　C.C　　D.D

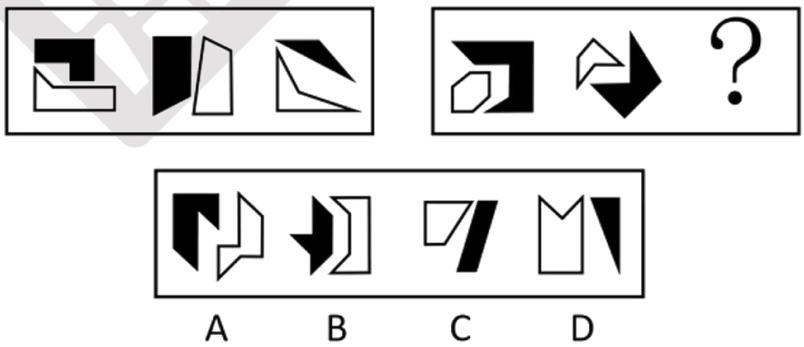

40.根据图形规律，填入问号处最合适的一项是（　　）。

A.A　　B.B　　C.C　　D.D

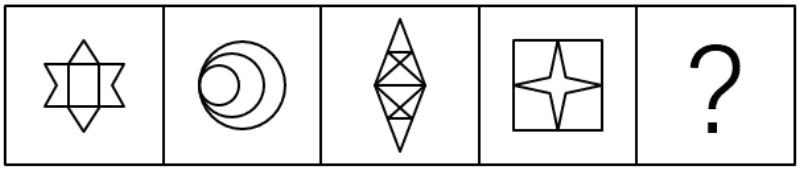

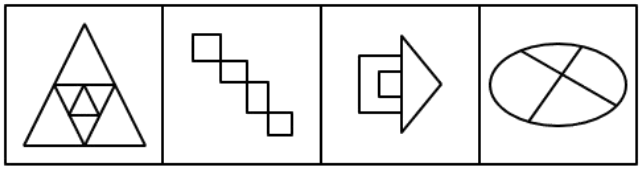

A B C D

川量教育
CHUANLIANG EDUCATION

第三章 定义判断

1.皮格马利翁效应是指人们基于对某种情境的知觉而形成的期望或预言，会使该情境产生适应这一期望或预言的效应。暗示在本质上，人的情感和观念会不同程度地受到别人下意识的影响。人们会不自觉地接受自己喜欢、钦佩、信任和崇拜的人的影响和暗示。

根据上述定义，下列属于皮格马利翁效应的是？（　　）

A.夫妻生活在一起时间长了，长相也变得相似

B.消防队逆行无畏的精神，让当地居民也自发加入扑灭山火的行动中

C.小王观看完航展的飞行表演后，购买了一架飞机模型留作纪念

D.东施模仿西施手捂胸口，皱着眉头的动作

2.首因效应是指个体在社会认知过程中，通过“第一印象”最先输入的信息对客体以后的认知产生的影响作用。

根据上述定义，下列俗语中体现了首因效应的是？（　　）

A.“众人拾柴火焰高”　　B.“大水冲了龙王庙”

C.“新官上任三把火”　　D.“情人眼里出西施”

3.认知偏差是人们在知觉自身、他人或外部环境时，常因自身或情境的原因使得知觉结果出现失真的现象。

根据上述定义，下列不属于认知偏差的是？（　　）

A.小李每天早上坚持晨跑，所以邻居们都觉得他是个热爱运动的人

B.只有朋友来家里做客时，小周才会把屋子打扫得一尘不染，朋友以为小周是个讲究卫生的人

C.赵医生身材高大，体格强壮，常被路人以为是健身教练

D.小王对小杨撒过一次谎后，尽管他之后每次都说真话，但小杨仍认为他是个爱撒谎的人

4.行政沟通，是指行政组织之间、行政组织与公务人员之间，以及公务人员之间，为实现共同的行政目标，用语言、文字、图片、动作等形式交换有关问题的内心感受、观念、意见、事实与信息，以期获得相互了解并产生一致行为的过程。

根据上述定义，下列不属于行政沟通的是？（　　）

A.某市人社局向民政局发函，民政局复函

B.发改委在制定政策时向市场主体征求意见

C.教育部制定“双减”政策时向各地教育局征求意见

D.财政局的同事，在下班吃饭时讨论工作

5.口红效应，是指因经济萧条而导致口红热卖的一种有趣的经济现象。这是因为，在经济不景气的情况下，人们仍然会有强烈的消费欲望，这时，人们的消费就会转向购买廉价奢侈品，而口红虽非生活必需品，却兼具廉价和粉饰的作用，能给消费者带来心理慰藉。

根据上述定义，下列未能体现口红效应的是？（　　）

A.2008 年经济危机下，全球经济衰退，甲国的电影票房却上涨了

B.由于公司效益不好，张三收入降低，但为了提高生活品质，仍购置了一辆小汽车

C.李四最近被公司裁员，但仍然为自己买了一条领带

D.乙国在疫情期间，经济负增长，但眼影和睫毛膏的销量大幅上升

6.角色冲突：当一个人扮演一个角色或同时扮演几个不同角色时，由于不能胜任，造成不合时宜而发生的矛盾和冲突。

下列情形中不属于角色冲突的一项是？（　　）

A.一些大一新生入学后，面对新的生活环境很不适应

B.某公司一职员由于业绩出众，被公司提拔为销售经理，但是他感到力不从心

C.假期里，张某的妻子想让他陪她出去旅游，而他母亲想让他回家陪陪父母

D.在边远山区的一所小学里，某位老师既教数学，又教语文，但学生们的两门功课成绩都很好

7.附加值是附加价值的简称，是在产品原有价值的基础上，通过生产过程中的有效劳动新创造的价值，即附加在产品原有价值上的新价值。

根据上述定义，下列行为提高了产品附加值的是？（　　）

A.某体育明星为比赛优胜者的奖品签名

B.雨天商贩以高于市场价的价格销售雨伞

C.某生产饮料的厂家将产品由过去的罐装变为塑料包装

D.个体商贩请人在白色 T 恤上画上各种漂亮的图案后出售

8.求助者有两种求助动机，即执行性求助和工具性求助。前者是自己不作任何尝试或努力，只想知道答案或让他人代自己完成任务；后者是借助其他人的力量以达到自己解决问题或实现目标的目的。

根据上述定义，下列属于工具性求助的是？（　　）

A.妈妈为六岁的小红报了很多兴趣班，小红在兴趣班中结识了许多新朋友

B.李老师耐心讲解了这道题的思路和原理后，小明还是请老师直接给出答案

C.综合了多家咨询机构提供的意见，小王拟定了符合自身条件的留学规划

D.小陈每次阅读英语文章遇到生词时都会查阅词典，掌握生词的读音和意思

9.直接暗示是指暗示者有意识地、一般采取直陈式的说明，把某种信息直接提供给受暗示者，使他迅速而无意识地加以接受。间接暗示是指暗示者凭借其他事物或行动为中介，把要传达给受暗示者的关于某一种事物或行为的信息间接地提供给受暗示者，使他迅速而无意识地加以接受。

根据上述定义，下列属于间接暗示的是？（　　）

A.领导在全体干部职工大会上要求大家多读书

B.看到小王的考试成绩单，爸爸眉头一皱，对他的考试成绩很不满意

C.小李让人带了封信给小张，在信中小李请小张在选举时投自己一票

D.小陈的妈妈平时接待客人彬彬有礼，小陈在妈妈的实际行动中明白了待人要有礼貌

10.中等收入陷阱，是指当一个国家的人均收入达到中等水平后，由于难以实现经济发展方式的有效转变，出现收入分配差距拉大、人力资本积累缓慢、城市化进程受阻、产业升级艰难以及金融体系脆弱等一系列问题，导致持续增长动力不足和社会矛盾频发的一种状态。

根据上述定义，下列情形属于中等收入陷阱的是？（　　）

A.某国人均收入突破 1000 美元的“贫困陷阱”后，由于发展战略失误，经济增长回落

B.某国在 20 世纪 70 年代进入了中等收入国家行列，但因经济结构单一，直到 2007 年人均收入仍然挣扎在 3000 美元至 5000 美元的发展阶段，并且看不到增长的希望

C.在经历二战后的经济高速发展期后，某国泡沫经济破裂，进入了大萧条时期

D.某国跻身中等收入国家行列后，虽然存在一些社会问题，但经济仍较快增长

11.住房反向抵押保险，又称“以房养老保险”，是一种将住房抵押与终身年金相结合的新型商业养老保险。即拥有房屋完全产权的产权人，将其房屋抵押给保险公司，继续拥有房屋居住权，并按照约定条件领取养老金直至身故；产权人身故后，保险公司获得抵押房屋处置权，将处置所得优先用于偿付养老保险相关费用。

根据上述定义，下列属于住房反向抵押保险的是？（　　）

A.李某将其父母的房子抵押给银行，获得银行 200 万元贷款

B.甲公司将公司所有一栋写字楼抵押给乙银行，向乙银行贷款 1000 万元，甲公司向丙财产保险公司投保了房屋抵押贷款保证保险

C.林某将自有一套房屋抵押给某保险公司，该保险公司按保险合同约定每月向林某支付 5000 元生活费

D.王某向某银行贷款 150 万元，以按揭方式向开发商购买一套商品房，王某向某财产保险公司投保个人购置房屋抵押贷款保证保险

12.紧急避险是指在迫不得已的情况下，为了使公共利益、本人或者他人的人身和其他权利免受正在发生的危险，不得已而采取的损害较小的另一方的合法权益，以保护较大的合法权益的行为。

根据上述定义，下列不属于紧急避险的是？（　　）

A.某地突然出现野猪袭击居民，该居民反抗时误伤野猪

B.女生搭顺风车遇上不良司机，不得不硬闯入附近百姓家中躲避

C.司机开车时前面突然跑出两名小孩，于是急打方向盘，撞倒路边的水果摊，所幸无人员伤亡

D.游客与藏羚羊合影被牧民收取高额费用，生气的游客打伤牧民

13.当学习者面临新的学习情境和问题情境时，如果利用原有的知识或技能获得了新知识或解决了新问题，这种迁移就是顺向迁移。学习者原有的知识技能不足以使其学习新知识或解决新问题时，学习者需要对原有的知识进行补充、改组或修正，这种后来学习对先前学习的影响就是逆向迁移。

根据上述定义，下列学习属于逆向迁移的是？（　　）

A.学习了圆柱知识后，小倩对圆的理解有了新认识

B.林子的平面几何学得很好，但是立体几何学不好

C.壮壮学习了笛子再去学洞箫，觉得学起来很轻松

D.大力学完了绘画课程后，又报名去学习书法课程

14.一个自然数的素根指的是将这个数除以这个数各位数字之和，再将所得商的整数部分继续执行前述操作，直至所得商不超过 10，这时该商的整数部分就是这个自然数的素根。

根据上述定义，以下哪项是正确的？（　　）

A.38 的素根是 5　　B.190 的素根是 2

C.1691 的素根是 5　　D.10001 的素根是 1

15.矛盾职业认同是指从业者对自身职业兼具认同和不认同，或认同职业某一方面而不认同其他方面，反映了个体对自身职业的复杂情感。

根据上述定义，下列属于矛盾职业认同的是？（　　）

A.小强对未来就业感到迷茫，一方面认为本专业相对好就业，另一方面觉得工作压力会很大

B.虽然觉得社会上有很多人对网络主播并不认同，但小飞却决定将主播当作一生的事业来做

C.小刚的父母希望他毕业后考公务员，但小刚自己却更喜欢做一名教师

D.老汪觉得送快递很累，但工作时间相对自由，因此他还是决定干下去

16.领导负面反馈是指领导对员工当前行为或绩效未达到目标或标准时所给予员工的指示、否定或批评，其目的是激励员工更加努力工作或改变行为方式以减小差距。

根据上述定义，下列属于领导负面反馈的是？（　　）

A.人力资源部王部长对总经理说，员工小李的工作能力实在太差，建议合同到期后不再续聘

B.厨师小徐因为炒菜口味问题被顾客多次投诉，厨师长对他进行了严肃批评并帮他寻找原因

C.在单位年终总结会上，小冯为激励自己进步，积极就自身工作不足向同事们征求批评意见

D.办公室侯主任把年度考核不合格的员工名单递交给人事处，人事处向员工通报了处理结果

17.框架效应是指对于相同的事实信息，采用不同的表达方式，会使人产生不同的判断决策。一般来讲，在损失和收益方面，人们更倾向关注损失。

根据上述定义，下列情形描述最不可能存在框架效应的是？（　　）

A.小明每天能得到一个面包，当被问“你吃了半个面包了，还吃吗”时，他选择不吃；而要是问“还有半个面包，你吃吗”，他会选择吃完

B.小红看到 A 理财产品能 100%地让自己获利 10%，而 B 产品能让自己有 85%的机会获利 200%时，毅然选择了投资 B 产品

C.鉴于消费者对脂肪的抵触情绪，某牛奶公司把所产牛奶产品相关描述从“含脂量”变为“脱脂量”，为此该公司销售业绩迅速上涨

D.“甲汽车客运站的客车发生车祸的概率仅为 0.001%，而乙汽车客运站的客车平安送达率

为 99.999%”看到这，乘客小坤选择乘坐乙汽车客运站的车

18.反向社会化是一种文化反哺现象，指的是年轻一代用新知识、新观念影响前辈，使得前辈掌握新技能、新理念或者改变原有生活习惯的过程。

根据上述定义，下列没有构成反向社会化的是？（　　）

A.在小李反复介绍“断舍离”的理念后，父母终于开始整理丢弃长久不用的物品

B.小王教会母亲使用微信以后，母亲每天都在使用微信和老友进行沟通

C.小张教会姥姥电子支付以后，老人终于可以不带现金出门了

D.小赵送给父亲的 65 岁生日礼物是一次为期 20 天的新疆游

19.过失投放危险物质罪是指行为人对其行为可能引起中毒，造成危害公共安全的严重后果已经预见，而轻信能够避免，或者对这种严重后果应当预见，由于疏忽大意没有预见，以致发生了严重的中毒事故，造成严重结果危害不特定多数人的生命、健康和重大公私财产安全的行为。

根据上述定义，下列不可能构成过失投放危险物质罪的是？（　　）

A.甲误将有毒废弃物品倒入村里池塘中，致使村中牲畜饮用后中毒

B.乙将喷过敌敌畏但未冲洗干净的蔬菜拿到集市上售卖，致多名购买者中毒

C.丙误将氰化钾当作药品拿给村民张某和王某服用，导致张某和王某死亡

D.丁将数个含有毒鼠强的番薯埋在田里毒野猪，同村魏某在不知情的情况下，将这些番薯挖回煮食，导致一家三口两人死亡，一人重伤

20.逆向文化冲击：指旅居他乡者回到故国或故乡后，短时间内在生活、心理等方面难以适

应本土文化的现象。

下列不属于逆向文化冲击的是？（　　）

A.大卫在中国从事英语培训工作 10 多年，回国后感到很不习惯。他在不久前的一段视频中抱怨说：半夜饿了，在中国拿出手机点个外卖，半个小时就送到了，而这里啥都没有，只能饿死在去超市的路上

B.在城里生活多年的老杨，今年春节回到农村老家后，亲戚朋友请他到附近饭店吃饭。开席后，他习惯性地让服务员去拿公筷、公勺，服务员惊讶地看着他，半天没反应过来，亲戚们也觉得他怪怪的

C.留学刚回国的小吴约朋友去青岛看海，因为没有 12306 账户，只得请朋友帮忙购票。上车后他惊讶地发现，高铁上不仅可以扫码点餐，还可以点外卖，自己头天准备的面包、饼干一点没用上。他感觉自己在朋友心目中简直就像个弱智

D.欧洲姑娘玛丽来华留学，虽然早已听说过中国的无现金支付，第一周她还是惊呆了：楼下卖红薯的大爷都在用“互联网”，菜市场的每个摊位上居然都有收款二维码，更不要说超市和商场了

第四章 逻辑判断

1.某班分小组进行摘草莓趣味比赛，甲、乙、丙 3 人分属 3 个小组。3 人摘得的草莓数量情况如下：甲和属于第 3 小组的那位摘得的数量不一样，丙比属于第 1 小组的那位摘得少，3 人中第 3 小组的那位比乙摘得多。据此，将 3 人按摘得的草莓数量从多到少排列，正确的是？（　　）

A.甲、乙、丙　　B.甲、丙、乙　　C.乙、甲、丙　　D.丙、甲、乙

2.某单位邀请 7 位评标专家甲、乙、丙、丁、戊、己、庚参加评标工作，7 位评标专家随机被分成两组，其中第一组 3 人，第二组 4 人，但分组须符合以下要求：

①甲和丙不能在同一个小组

②如果乙在第一组，那么丁必须在第一组

③如果戊在第一组，那么丙必须在第二组

④己必须在第二组

如果丙、戊在同一组，那么不可能在同一组的是？（　　）

A.甲和乙　　B.甲和丁　　C.乙和庚　　D.丙和庚

3.航天局认为优秀宇航员应具备三个条件：第一，丰富的知识；第二，熟练的技术；第三，坚强的意志。现有至少符合条件之一的甲、乙、丙、丁四位优秀飞行员报名参选，已知：①甲、乙意志坚强程度相同；②乙、丙知识水平相当；③丙、丁并非都是知识丰富；④四人中三人知识丰富、两人意志坚强、一人技术熟练。航天局经过考查，发现其中只有一人完全符合优秀宇航员的全部条件。他是（　　）。

A.甲　　B.乙　　C.丙　　D.丁

4.动物园中有三种动物：骆驼、大象和猴子，它们的年龄均为整数。三个伙伴小张、小王和小李去动物园参观动物，他们各选择一种动物去参观，三人选的动物各不相同。已知：

①大象住在动物园东边的动物馆；

②骆驼已经 4 岁，住在西边的动物馆；

③小王去看的是动物园东边和西边之间的动物；

④小张去看的动物年龄最小；

⑤三种动物年龄从西到东依次增加，且平均年龄为 5 岁。

以下说法正确的是（　　）。

A.猴子年龄为 5 岁　　B.大象年龄为 7 岁

C.小王参观的是大象　　D.小李参观的是骆驼

5.有四个外表看起来没有分别的小球，它们的重量可能各有不同。取一个天平将 1、2 放一组，3、4 为另一组分别放在天平的两边，天平是基本平衡的。将 2 和 4 对调一下，1、4 一边明显要比 2、3 一边重很多。可奇怪的是我们将天平的一边放上 1、3，而另一边刚放上 2，还没有来得及放上 4 时天平就压向了 2 一边。

则四个球由重到轻的顺序是（　　）。

A.2、4、1、3　　B.4、2、3、1

C.2、1、4、3　　D.4、2、1、3

6.大多数治疗精神疾病的药物会引起体重增加，尽管在服用这些药物时，节食和适量运动有助于减少体重增加，但不可能完全避免这种体重增加。

由此可以推出（　　）。

A.医生不应该给超重的病人开治疗精神疾病的药物

B.有一些服用治疗精神疾病药物的病人的体重增加

C.服用治疗精神疾病药物的人超重，是因为他们没有坚持节食

D.服用治疗精神疾病药物的病人即使节食和运动也不能完全保证体重不变

7.英国肯特大学的研究人员让两组志愿者分别玩益智游戏和观看关于跑车的纪录片，然后再让他们进行室内自行车耐力测试。结果，自认为筋疲力尽的第一组成员比第二组更容易放弃。然而，研究者却发现，两组志愿者的血压、耗氧量及心排血量之间并没有差异。

由此可以推出？（　　）

A.玩益智游戏与看电视消耗的体能相同

B.两组志愿者之间的体能素质十分相近

C.脑力活动影响体力只是一种感觉偏差

D.体力劳动可以激发脑力劳动者的潜能

8.计算机程序的不同寻常之处是它既被专利保护，又被版权保护。专利权保护发明背后的思想，而版权保护那种思想的表达。但是，为了赢得任一项保护，思想必须清楚地与其表达区分开来。

由此，可以推出（　　）。

A.一些计算机程序背后的思想能与表达区分开来

B.任何写计算机程序的人是该程序思想的发明者

C.计算机程序专利权像版权一样不难获得

D.很少有发明者既是专利权又是版权的所有人

9.某高校对过去 5 年本校本科毕业生中获得学位证书的情况进行调查，得出的结论是：以低于 95%的同届学生的成绩作为不能获得学位证书的标准，该校没有获得学位证书的毕业生数量一直在持续上升。

如果上述调查中的发现是正确的，据此可以得出下列哪项结论？（　　）

A.5 年来，该校毕业生学习成绩在持续下降

B.5 年来，该校获得学位证书的毕业生数量在持续下降

C.5 年来，该校获得学位证的毕业生数量也在持续上升

D.该校学生随着年级的增长，学习成绩反而下降

10.国外的心理学研究表明，当遇到有人冒犯你时，如果你选择原谅冒犯者，冒犯者会更有可能在心理上感到悔恨而产生内在的愧疚。因此，类似的冒犯行为再次发生的可能性将会大大降低。根据以上观点，可以推出（　　）。

A.被冒犯者原谅冒犯者，将可能有助于感化冒犯者

B.如果你不原谅冒犯者，类似的冒犯行为必然会增加

C.经常原谅冒犯者，就可能减少自己被冒犯的可能性

D.遇到冒犯者，原谅是唯一避免再次发生冒犯的方法

11.为了减轻电脑辐射对人体产生的危害，国内一家电脑制造商开发出一种特别的显示屏，这种显示屏产生的环绕使用者的电磁场比正常的屏幕产生的电磁场少得多，尽管比其他竞争者具有这方面的优势，该制造商在把这种显示屏引入市场时并未在广告中称其是一种改进了安全性的产品。

下列哪一项最能解释该制造商为什么不在广告中宣扬其是一种改进了安全性的产

品？（　　）

A.宣扬新产品将导致消费者对其已在市场销售的屏幕的安全性能提出质疑

B.该制造商并不想让其竞争对手知道本公司是如何实现在技术上的进步的

C.其每年在国内市场销售的电脑比在其他国家市场上销售的电脑多得多

D.当有更好的技术出现时，大多数电脑使用者迟早都会更换电脑

12.美国佛罗里达州的一些社区几乎全部是退休人员居住，即使有也只有很少的带小孩的家庭居住。然而这些社区聚集了很多欣欣向荣的专门出租婴儿和小孩使用的家具的企业。

以下哪项如果是正确的，能最好地调和以上描述的表面矛盾？（　　）

A.专门出租小孩用的家具的企业是从佛罗里达州外的批发商那里买来的家具

B.居住在这些社区的为数不多的孩子都相互认识，并经常到其他人的房子里过夜

C.这些社区的许多居民经常搬家，更愿意租用他们的家具而不愿意去买

D.这些社区的许多居民必须为一年来访几个星期的孙子或孙女们提供必要的用品

13.为了粮食安全，某国家近一年来连续四次下调粮食出口退税率，以抑制粮食出口，但是，该国粮食出口仍然在不断增加，在国际商场上有很强的竞争力。

以上述如果为真，最能支持这一情况的是（　　）。

A.国际市场上粮食处于供不应求的状态

B.该国粮食的质量在国际市场上享有很高的声誉

C.该国粮食的价格在下调退税率后仍然比其他国家低

D.该国粮食的产量仍然在不断增加

14.一项调查显示：甲品牌汽车的购买者中，有 8 成都是女性，是最受女性青睐的汽车品牌。但是，最近连续 6 个月的女性购车量排行榜却显示，乙品牌汽车的女性购买量位居第一。

以下选项如果为真，最能解释上述现象的是（　　）。

A.甲品牌汽车的销量远低于乙品牌汽车

B.乙品牌汽车的女性买主所占比例为 75%

C.排行榜设立的目的之一是引导消费者的购车意图

D.购买意愿和购买行为并不总是一致的，不可混为一谈

15.导游："从朝天宫到金顶有两条道路可以走，一条是明代神道，一条是清代神道。清代神道路程比较近，台阶坡度也较小，走起来容易；明代神道路程比较远，台阶坡度也比较大。"选择走清代神道的小马走了一半，发现清代神道的台阶也很多、很陡，他不由得抱怨导游误导了他。

以下哪项如果为真，最能解释上述导游和小马的认识差异？（　　）

A.明代神道的台阶更多、更陡

B.小马平时缺少锻炼，爬山少

C.清代神道的台阶主要集中在前半段

D.导游几乎天天爬山，他说容易，但是对于游客却很难

16.人人都是可以不普通的。如果你认为自己是最优秀的人，你就会按照最优秀的人的标准来要求自己。如果你相信自己能够成功，你就一定能成功。只有先在心里肯定自己，你才能在行动上充分地展现自己。

根据以上陈述，可以得出以下哪项？（　　）

A.如果你不认为自己最优秀，你就不会按照最优秀的人的标准来要求自己

B.如果能在行动上充分地展现自己，那么一定是先在心里肯定了自己

C.有的人虽然自信能够成功，但实际上未必能够成功

D.你只有相信自己能够成功，才可能取得成功

17.某考生正在填报志愿，有法律、管理、经济、金融、审计和会计 6 个专业是考虑填报的专业，但是综合各方面因素，有如下的考虑：

如果填报法律专业，那么就不填报管理专业，但要填报会计专业；

只有不填报审计专业时，才填报金融或经济专业；

如果不填报经济专业，那么也不填报会计专业；

法律专业一直是自己想读的专业，一定要填。

由此可以推出该考生（　　）。

A.填报了金融和经济专业

B.管理专业和经济专业都没填报

C.填报了法律专业，还填报了金融专业

D.填报了会计专业，但没填报审计专业

18.中国共产党党章是对每一位共产党员的基本要求。党员领导干部要做学习党章、遵守党章的模范。凡是党章规定党员必须做到的，领导干部要首先做到；凡是党章规定党员一定不能做的，领导干部要带头不做。

根据以上信息，可以得出以下哪项？（　　）

A.凡是党章规定领导干部首先做到的，党员必须做到

B.凡是党章规定领导干部带头不做的，党员一定不能做

C.有些党章规定领导干部要首先做到的，党员必须做到

D.有些党章没有规定党员必须做的，领导干部要首先去做

19.周末，甲、乙、丙、丁在商场偶遇，一阵寒暄过后得知，他们几人在商场要么只看了电影，要么只购了物：

①丁有购物

②如果甲有购物，那么乙去看了电影

③如果丁没有购物，那么丙去看了电影

④甲和乙都有购物

如果以上陈述只有一项为真，可以推出（　　）。

A.乙有购物，甲看了电影　　B.丙有购物，乙看了电影

C.丙有购物，丁看了电影　　D.甲和乙都看了电影

20.某单位拟选派本单位人员去外地出差，候选人有甲、乙、丙、丁、戊、己 6 人，工作会上几位领导的意见如下：

A：甲和乙至少要去一个

B：如果丙不能去或丁不能去，那甲也不能去

C：如果丙不能去，己也不能去

D：只有戊去了，乙才能去

E：戊不能去

工作会后，所有领导的意见都被采纳。由此可推出（　　）。

A.乙去了　　B.甲没有去

C.无法确定己去没去　　D.无法确定丙、丁去没去

21.“五岳归来不看山”，以下选项与上述推理方式最相近的是（　　）。

A.疑是银河落九天　　B.桂林山水甲天下

C.稻花香里说丰年　　D.二月春风似剪刀

22.理论认为，反物质是正常物质的反状态，当正反物质相遇时，双方就会相互湮灭抵消，发生爆炸并产生巨大能量，有人认为，反物质是存在的，因为到目前为止没有任何证据证明反物质是不存在的。

以下哪项与题干中的论证方式相同？（　　）

A.圣女贞德的审问者们曾对她说，我们没有证据证明上帝与你有过对话，你可能是在胡编乱造，也可能精神失常

B.动物进化论是正确的，例如始祖鸟就是陆地生物向鸟类进化过程中的一类生物

C.既然不能证明平行世界不存在，那么平行世界就是存在的

D.长白山天池有怪兽，因为有人看见过怪兽曾在天池内活动的踪迹

23.人每天睡觉 8 小时，占了一生的三分之一，每周周末休息两天，又占了七分之二的时间，这两项加起来时间就超过一半了，即使剩下的时间全部用来学习，也只有不到一半的时间了。

以下哪项与上述逻辑错误最相似？（　　）

A“三八节”下午，占全班人数一半的女同学可以不上课，另外班上有一半同学是党员，下午要开会，班级就没剩几个人了，所以班主任通知下午不上课了

B 一头肉牛整头可卖 2000 元，如果屠宰完分开卖则牛头和骨头合起来可卖 700 元，内脏可卖 300 元，所以剩下的牛肉和皮等至少要卖 1000 元，否则还不如整头卖

C 西瓜可以分为有籽西瓜和无籽西瓜，也可以分为红瓤西瓜和黄瓤西瓜

D 温度高低与风力大小没有明确的关系，但是事实上南极是最冷的地区，也是风力最大的地区

24.有位青年到杂志社询问投稿结果。编辑说："你的稿子我看过了，总的来说有一些基础，不过在语言表达上仍不够成熟，流于幼稚。"青年问："那能不能把它当作儿童文学作品呢？"

下列选项中与青年所犯的逻辑错误相同的是（　　）。

A.甲到处宣扬说："我从来不炫耀自己的优点。"

B.甲说："人生太短暂，我们应该珍惜时间，抓住机会，尽情挥霍。"

C.甲问："我能用蓝笔墨水写出红字，你信吗？" 乙答："不信。" 甲就提笔在纸上写了一个"红"字

D.甲开车撞到了行人乙，二人争执起来，甲说："我有多年驾驶经验，责任不可能在我。"

25.世界上没有两片相同的树叶。因此，枫叶和桑叶不相同。

以下与上述推理在结构上最为相似的一项是（　　）。

A.人非圣贤孰能无过，这是因为，只有圣贤者才能无过

B.不能将功补过，这是因为，功是功，过是过

C.草木皆兵，因此，薰衣草是士兵

D.燕雀安知鸿鹄之志，因此，鸿鹄的志向是远大的

26.某公司举行优秀员工评选活动，在最后一轮评选中有甲、乙、丙、丁四名员工入围。甲认为乙会当选，乙认为丙会当选，丙和丁都认为自己不能当选。评选结果公布后发现，上述四种猜测只有一种是错误的。

由此可以推出，一定当选的是（　　）。

A.甲　　B.乙　　C.丙　　D.丁

27.某旅游团去瓷都景德镇旅游，游客们游玩之后，纷纷购买纪念品。关于游客们是否购买了瓷器，有以下一些说法

①游客们都买了瓷器

②该团的王女士买了白瓷

③有的游客没买瓷器

④如果该团的郑先生没买青瓷，那么该团的王女士就买了白瓷

如果上述说法两真两假，那么以下哪项一定为真？（　　）

A.该团的王女士没买瓷器　　B.该团的郑先生买了青瓷

C.该团的王女士买了白瓷　　D.该团至少一人没买青瓷

28.期末考试过后，四位老师对六年级（1）班的英语课成绩有如下结论：

甲：所有学生没有及格的。

乙：英语课代表王萌萌没有及格。

丙：学生并不是都没有及格。

丁：有的学生没有及格。

如果四位老师中只有一人断定属实，那么判断属实的是（　　）。

A.甲　　B.乙　　C.丙　　D.无法判断

29.国家统计局到某单位开展反腐倡廉公众满意度调查，该单位包括局长在内共有 373 名员工。有关这 373 名员工，以下三个断定中只有一个是真的：（1）有人满意；（2）有人不满意；（3）局长不满意。

根据这段文字，以下为真的是（　　）。

A.373 名员工都满意　　B.373 名员工都不满意

C.有 1 名员工不满意　　D.无法确定该单位满意人数

30.甲、乙、丙、丁四个人被分配参与四种工作，每个人工作各不相同且至多使用一个工具。甲说：所有的工作中都要用到老虎钳；乙说：本人的工作要用螺丝刀；丙说：我的工作不要用扳手；丁说：有的工作中没有用到老虎钳。

如果其中只有一句话为真，那么以下哪项为真？（　　）

A.丙的工作中要用扳手　　B.有的工作中要用螺丝刀

C.乙的工作中要用螺丝刀　　D.所有的工作中都要用老虎钳

31.近年来，随着移动互联网的迅速发展，各类手机 APP 逐渐成为人们日常生活的“必需品”，但也面临着一些手机 APP 广告的困扰。有些用户认为“没什么感觉，不必太在意”，但也有反对者认为，手机 APP 广告降低了用户体验，潜藏安全风险，需要加大治理力度。

以下哪项如果为真，最能支持反对者的观点？（　　）

A.多数用户反映，手机 APP 广告存在伪装页面、诱导点击、弹窗信息关闭按钮过小等问题，稍不注意就可能导致财产损失

B.近期，工信部针对用户反映强烈、投诉较多的手机 APP 出现的违规行为进行了集中整治，取得了阶段性成果

C.移动互联网时代，注意力是稀缺资源，植入广告、流量变现成为许多应用程序盈利的手段

D.手机 APP 接入广告本身并无不可，关键在于相关操作要符合法律规定

32.碳酸钙是珍珠的主要成分，占珍珠比例的百分之九十，但是，想用皮肤来吸收碳酸钙，这几乎是不可能的，因为皮肤有多层结构，固体的珍珠粉很难渗入。珍珠粉外敷之后若有残留粉末，可能会反射出一定的光泽，显得皮肤变白了。其实这只是假象。所以，想靠着珍珠粉去美白是不太现实的。

下列选项除了哪项外，均能反驳上述论证？（　　）

A.现代技术能让珍珠粉的大小达到百纳米以下，可以被吸入皮肤

B.某明星有长期外用珍珠粉的习惯，年过 60 仍皮肤润泽柔滑，细腻白皙

C.珍珠粉外敷能部分隔绝空气，减缓空气对皮肤表层细胞的氧化，长期使用能延缓衰老

D.珍珠粉中的牛磺酸具有加强巨噬细胞吞噬的能力，黑色素进入表皮层之后部分会被巨噬细胞吞噬降解

33.物业专项维修基金主要用于支付物业共用部分、共用设施设备等的维修费用。某市物业专项维修基金强制缴存工作已经执行了近 20 年，实现资金归集总额近 200 亿元，去年全年增值收益 10 亿元，而去年一年被使用的维修基金仅仅只有 4000 万元。对此，有市民建议，政府应该考虑降低物业专项维修基金的缴存标准。

以下哪项如果为真，最能反驳市民的这一建议？（　　）

A.降低新建成楼宇的物业专项维修基金缴存标准对已缴存业主不公平

B.部分小区使用小区公共收益解决共用部分、共用设施设备的维修问题

C.该市已启用新的资金管理办法解决申请使用维修基金流程繁琐的问题

D.该市缴存资金的大部分楼宇都是近几年建成，尚处于开发商的保修期内

34.端粒是 DNA 片段，其长度在出生时很长，后逐渐变短，被视为衰老的标志。研究人员分析了多年的数据后发现：至少生育一个孩子的女性其端粒的平均长度比未生育的女性缩短。这个百分比相当于 11 年的细胞衰老结果，超过了吸烟和肥胖对细胞老化的影响速度。因此有人提出，生育孩子会让女人加速衰老。

以下哪项如果为真，不能驳斥上述观点？（　　）

A.细胞衰老并不代表个体衰老，细胞衰老是防止细胞发生癌变的重要方式

B.怀孕过程中妇女体内的雌激素水平持续剧烈上升，对细胞端粒具有保护作用

C.人体结构非常复杂，包括各类细胞、组织、器官，衰老不能通过“端粒”来简单解释

D.生育有助于女性健康，可降低多种疾病风险，母乳喂养一年，可使妇女患乳腺癌的风险降低三成

35.近年来减肥人士所追捧的低碳饮食，指的是在饮食中严格限制碳水化合物的摄入量，增加蛋白质和脂肪的摄入量。一些研究指出，通过降低饮食中的碳水化合物不但可以达到减重的目的，还能在一定程度上降低血液胆固醇水平，令心脏病风险有所降低。所以不少支持者认为，长期低碳饮食对身材和健康都有益。

以下哪项如果为真，不能削弱上述结论？（　　）

A.研究发现只有 1%的人能够长期坚持低碳饮食，平均坚持 19 个月

B.低碳饮食者会更多进食蛋白质、脂肪，不适合冠心病、痛风等患者

C.碳水化合物是营养膳食的基础，长期低碳饮食会影响大脑功能，导致精神萎靡

D.少吃才是减肥的硬道理，通过改变碳水化合物、蛋白质和脂肪的比例并不能起到效果

36.“饿怒”是“饥饿”和“愤怒”两个词的合成词。最近，研究人员在欧洲招募了 64 位自愿受试者，在 21 天里，对他们在日常工作和生活环境中，处于饥饿状态时的情绪变化数据进行了收集整理分析。得出的结论是，愤怒和易恼等情绪与饥饿之间存在被诱导的关系，也就是说，饥饿会使人们“饿怒”。

以下哪项如果为真，最能支持上述结论？（　　）

A.受试者在饥饿状态下，能保持情绪愉悦的只有不到 10%

B.饥饿与更强烈的愤怒和易恼情绪以及更低的愉悦感有关

C.饥饿状态下的受试者，47%出现易恼情绪，44%出现愤怒情绪

D.科学家早已知道饥饿会影响人的情绪，但才发现会导致“饿怒”

37.快速暴汗、狂甩赘肉、不胖勿点……近期暴汗服可谓火爆网络。商家直播时声称，穿暴汗服运动半小时，所流的汗水超过不穿暴汗服状态下运动 2 小时所流的汗水。因此能帮助运动者加快新陈代谢，降低体重，迅速减肥。

以下哪几项如果为真，最能质疑商家宣传？（　　）

①暴汗后的即时体重下降，减少的是身体里的水分，没有减少脂肪

②暴汗服是利用衣服材质不透气性和隔热性，让人运动时出更多汗

③大量出汗使人体水分大量流失，易造成脱水，严重时会危及生命

④脂肪分解主要产生二氧化碳，通过肺呼出，出汗多不等于减脂肪

A.①④　　B.②③　　C.①③④　　D.①②③④

38.有研究小组通过分析 145 名 12 岁儿童的核磁共振成像扫描结果，并基于儿童的住址信息评估他们近期接触的大气污染情况，其中包括细颗粒物质等。研究人员还将人口统计信息纳入分析，从而分析社会经济地位和种族因素是否会对研究结果造成影响。研究小组对比分析儿童近期与交通相关的空气污染暴露指数、报告的焦虑症和脑成像数据之后，发现生活在空气污染暴露指数较高区域的儿童出现广泛性焦虑症。

以下哪项如果为真，最能加强上述论证？（　　）

A.出生前接触多环芳烃等污染颗粒较多的儿童，其左脑白质体积较少，白质是一种白色脂肪物质，它能使神经元绝缘

B.焦虑症是一种复杂的疾病，肌醇异常引起的大脑功能紊乱与交通污染和焦虑症之间关联性不高

C.多环芳烃暴露水平较高的儿童，常缺乏营养食物，相应的住房条件和享用的公共设施也较差

D.有充分理由表明空气污染会直接影响大脑，这些细微污染颗粒会对人类精神健康产生影响

39.某消费导向杂志在读者中做了一项调查，以预测明年的消费趋势。在被调查者中，有 57%的人在明年有奢侈品项目消费的计划。该杂志由此推测：明年消费者的消费能力会很强。

以下哪项如果为真，最能削弱该杂志的推测？（　　）

A.该刊物的读者要比一般消费者富有

B.并非所有该刊物的读者都对调查作了回答

C.大多没有奢侈品项目消费计划的人都打算存钱买房

D.计划购买的奢侈品大多是进口的，并不能刺激国内市场

40.地球上水来自哪里？有研究认为彗星或小行星是主要来源。研究数据表明，彗星上的水分与地球水分并不匹配，而去年坠落在英国温奇科姆镇上的陨石中的水分与地球水分更匹配，这意味着小行星可能是太阳系内部和地球的主要水源。

以下哪项如果为真，最能削弱上述论证？（　　）

A.温奇科姆镇的陨石被发现的时候，当地正是雨季并且当天刚下过雨

B.温奇科姆镇的陨石较少部分由水组成，这些水的组成与地球海洋中水的组成较为相似

C.温奇科姆镇发现的陨石是英国已知的第一颗碳质球粒陨石，碳质球粒陨石含水可能性较小

D.温奇科姆镇这块陨石来自木星附近的一颗小行星，它形成于大约 50 亿年前，比地球的形成要早

41.生酮饮食是指高脂肪高蛋白但极低碳水化合物水平的膳食模式，其减重效果十分惊人。尽管低碳饮食整体上效果良好，但其作用机制至今尚不明确。目前流行的“碳水化合物-胰岛素模型”（简称 CIM 模型）认为，摄入碳水化合物会引起餐后胰岛素水平激增，而胰岛素促进机体摄入的能量储存到脂肪组织中，产生饥饿信号，这会抑制代谢率并进一步刺激进食。但低碳水的生酮饮食则会打破这一循环，降低机体对食物的渴望并提高代谢率，因此减肥效果显著。

以下各项如果为真，最能质疑上述 CIM 模型的是？（　　）

A.根据 CIM 模型，低碳水饮食会导致食欲降低和体重降低，但目前对肥胖和超重患者采用低碳水饮食的研究结果各异

B.科研人员认为，基础胰岛素水平比摄入碳水化合物后升高的胰岛素水平对减肥更重要

C.一种新的模型认为，肥胖的发生是胰岛素和其他激素共同作用的结果，而不是 CIM 模型认为的简单的碳水化合物-餐后胰岛素水平调控通路

D.CIM 模型预测，摄入高碳水饮食后引起更高餐后血糖水平，进而导致较高的体重和体脂水平，但是动物实验和人类实验均显示了相反的结果

42.“好奇号”火星探测器在火星大气中发现了浓度惊人的甲烷，探测到的甲烷含量比之前的发现高出三倍左右。这一发现暗示了火星上存在外星生命的可能性。

下列最能增强上述观点的是？（　　）

A.甲烷可以由微生物产生

B.上世纪的“海盗号”火星探测器在火星表面发现过甲烷存在的迹象

C.岩石和水之间的相互作用可以产生甲烷

D.火星大气中的甲烷浓度随季节变化

43.如果小琳是法院工作人员，那么她一定毕业于法学专业。

为使上述推理有效，需要补充的前提是？（　　）

A.如果不是毕业于法学专业，是不能到法院工作的

B.法学专业毕业的一律到法院工作

C.法学专业毕业也可能进入了法院工作

D.如果是法学专业毕业，那么一定要到法院工作

44.甲、乙两公司均为使用其公司数码产品有疑难问题的顾客提供 24 小时的热线电话咨询服务。拨打热线电话要收取相应的通话费用，所以通常来说，消费者只有在使用数码产品遇到困难时才会拨打电话。甲公司接到的热线电话数量比乙公司多 5 倍。这说明，甲公司的数码产品一定比乙公司的复杂又难用。

以下各项如果为真，最能支持上述结论的是？（　　）

A.乙公司数码产品的消费者数量比甲公司的多 2 倍

B.甲公司数码产品的消费者数量比乙公司的多 5 倍

C.乙公司收到的有关数码产品质量问题的投诉比甲公司多 2 倍

D.甲公司收到的有关数码产品质量问题的投诉比乙公司多 5 倍

45.人们常说“要想身体好，天天吃核桃”，多年经验浓缩成的俗话一定有它的道理，最近，有研究证实，多吃核桃的确有益肠道健康，可增加大量的有益肠道细菌，因此对人类心脏有好处。

上述论证若要成立，必须增加的前提是？（　　）

A.充满益生菌的肠道，可以长时间地保护人类心脏健康

B.核桃可以增加肠道益生菌，从而降低患高血压的风险

C.每天食用核桃可以帮助中老年人降低血压和胆固醇

D.核桃还对糖尿病人的血糖控制有一定的帮助

46.美国斯坦福大学的研究人员对 130 名同时患有血脂异常、高血压（并未服用降压药）的患者进行了长达 12 年的试验。在试验中，研究人员将这 130 名研究对象随机分成人数相等的两组，并让其中的一组研究对象服用松树皮提取物（每天服用的剂量为 200 毫克），另一组研究对象服用安慰剂。在这 12 年中，研究人员每 6 周测量 1 次研究对象的血压、血糖、胆固醇及 C 反应蛋白的水平。试验结果显示，服用松树皮提取物人员的上述各项指标与服用安慰剂人员的上述各项指标并无明显的差别。由此可知，松树皮提取物无降血压、降血糖、降血脂以及预防心血管疾病等功效。

以下各项如果为真，最能反驳上述结论的是？（　　）

A.两组试验患者仅人数相等，其血压和血脂等的原始指标差异较大

B.对照组服用安慰剂，对高血压和高血脂患者有心理暗示作用

C.12 年的实验时间太长，这有可能使一些重要的实验数据失真

D.参加实验的患者人数仅 130 人，样本太小，代表性不够

47.近两年，我国一些部属师范院校的专业组投档线飙升，非部属师范院校也水涨船高。专家认为，近两年高考录取中，职业稳定、社会需求大、就业前景明朗的专业更受欢迎，其中师范类和公安、司法等专项的招录情况都比较好。

以下哪项如果为真，最能支持上述论证？（　　）

A.家长是教师的考生更愿意选择师范类专业

B.近年来国家加大了对定向师范生的支持和培养力度

C.就业竞争日趋激烈，考生专业选择心态更加趋向求稳

D.新兴专业如大数据、人工智能、生物医药等受到许多考生青睐

48.火星的奥林帕斯山是太阳系中已知的最高火山，高度为 25000 米，几乎是地球上最高峰——珠穆朗玛峰的 3 倍。研究人员认为奥林帕斯山具有如此令人称奇的高度，主要是因为相比地球而言，火星的重力较低且火山喷发的频率较高，造山熔岩流在火星上持续的时间比在地球上要长得多，故而形成了巨大火山。

以下哪项如果为真，最能削弱上述结论？（　　）

A.土星、木星属于气体星球，由于没有地幔运动，所以也就没有火山爆发

B.地球上的河流常会侵蚀山脉的边缘物质，引发山体滑坡，这就限制了山峰生长

C.金星与地球重力相近，其火山喷发的频率极高，可谓火山密布，但火山大多不高

D.一些与火星相似的星体，虽火山喷发活跃，熔岩持续出现，但因为星体表面结构的变化，熔岩无法堆积，故不能形成大型火山

49.台风破坏力巨大，长期以来人们一直想找到控制台风的方法。在追踪台风的试验中，研究人员用飞机在台风的不同部位撒播碘化银、干冰、尿素等催化剂，结果发现台风眼区扩大了 6～7 倍，眼区周围风速也随之减弱。因此，研究人员认为上述播撒试验能较有效地干扰台风强度，削弱其力量。

以下哪项如果为真，最能削弱上述结论？（　　）

A.播撒试验相当于把台风核心区域的能量分散，从而削减或抑制其发展

B.播撒试验会引发台风内部的能量重新分布，可能会改变台风传播的路径

C.不少研究者认为，无论是物理学还是统计学上，播撒试验并不可靠

D.进行播撒试验时正好处于台风自身减弱的演变期，因此才获得了成功

50.中国人曾经把开汽车看成神话一般的事情。可没想到，短短十几年过去，成千上万辆汽车就开进了寻常百姓家。有专家指出，随之而来的不是我们生活质量的迅速提高，而是生活质量的迅速下降。

下列哪项如果为真，最能支持上述结论的是？（　　）

A.汽车尾气加剧了大气污染，近年来我国某些地区的雾霾天越来越多

B.过多汽车造成的道路拥堵和大气污染严重困扰着我们的日常生活

C.私家汽车的使用和养护需要大量费用，减少了家庭其他方面的消费

D.开车人必须有足够的环保意识，能少开就少开，能不开就不开

第三部分 数量关系

第一章 数字推理

1.270，120，265，130，260，140，（　　）

A.250　　B.255　　C.150　　D.160

2.9，8，7，16，5，（　　），（　　）

A.4，3　　B.15，4　　C.28，4　　D.32，3

3.25，56，81，137，（　　）

A.218　　B.220　　C.222　　D.224

4.39，52，67，84，（　　）

A.98　　B.101　　C.103　　D.107

5.（　　），54，115，206，333

A.15　　B.16　　C.17　　D.18

6.-15，16，-13，22，5，（　　）

A.76　　B.75　　C.74　　D.73

7.2，5，4，25，6，125，（　　）

A.8　　B.10　　C.225　　D.625

8.13，27，55，111，(　　)

A.221　　B.222　　C.223　　D.224

9.-8，64，(　　)，512，-1000

A.256　　B.-256　　C.216　　D.-216

10.12，22，46，90，160，(　　)

A.260　　B.262　　C.263　　D.264

11.2，3，5，9，17，33，(　　)。

A.62　　B.63　　C.64　　D.65

12.7，8，21，35，62，(　　)。

A.81　　B.90　　C.98　　D.103

13.73，91，111，133，157，(　　)。

A.36　　B.72　　C.240　　D.183

14.65，67，70，75，82，93，(　　)。

A.102　　B.104　　C.106　　D.108

川量教育 CHUANLIANG EDUCATION

15.1，13，45，97，169，（　　）。

A.181　　B.210　　C.249　　D.261

16.2，4，18，6，8，70，11，12，（　　）。

A.81　　B.99　　C.128　　D.155

17.256，269，286，302，307，（　　）。

A.316　　B.317　　C.318　　D.319

18.5，6，9，14，21，（　　）。

A.28　　B.29　　C.30　　D.31

19.-1，0，7，26，63，（　　）。

A.81　　B.98　　C.111　　D.124

20.31，32，33，30，35，28，37，（　　）。

A.27　　B.26　　C.25　　D.24

21.2，3，6，8，8，4，2，8，（　　），8，8

A.8　　B.6　　C.4　　D.3

川量教育 CHUANLIANG EDUCATION

22.1，1，3，5，11，(　　)，43

A.15　　B.16　　C.21　　D.26

23.2，9，-4，-7，6，(　　)，-8，-3

A.4　　B.5　　C.9　　D.11

24.1342，5786，2314，6758，3412，7856，(　　)，8576

A.4215　　B.4232　　C.4012　　D.4132

25.$\frac{7}{120}$，$\frac{7}{30}$，$\frac{21}{20}$，$\frac{28}{5}$，(　　)，252

A.$\frac{35}{3}$　　B.35　　C.70　　D.140

26.7，11，19，27，39，(　　)，55

A.48　　B.49　　C.50　　D.51

川量教育 CHUANLIANG EDUCATION

第二章 数学运算

1.小丽与小梅同时开始看相同的一本书，已知小丽每天看 30 页，小梅每天看 40 页，10 天后小丽将每天看的页数增加了原来的 1/2，如此，刚好与小梅同一天看完这本书，则这本书共有（　　）页。

A.1000　　B.1100　　C.1200　　D.1500

2.某工厂加工一批零件，甲车间加工这批零件的 20%，乙车间加工剩下的 25%，丙车间加工再剩下的 30%，这时还有 4200 个零件未加工，则这批零件共有（　　）个。

A.8400　　B.10000　　C.14000　　D.16800

3.某班级 3 名老师带领学生到餐馆就餐，在该餐馆就餐 80 元/人，学生可优惠五折。已知该班级学生的年龄之和是老师年龄之和的 5 倍，7 年前该班级学生的年龄之和是老师年龄之和的 2 倍，8 年后该班级学生的年龄之和是老师年龄之和的 7 倍。则该次聚餐一共花费（　　）元。

A.1960　　B.1800　　C.1880　　D.1920

4.某单位举办员工运动会，包括跑步、跳高、跳绳、拔河、掷铅球 5 个比赛项目，共 42 人参加了项目，每人只参加一项，已知有 12 人参加跑步项目，参加跳高和跳绳项目人数相同、参加拔河项目人数最多，参加掷铅球项目人数最少仅有 5 人。参加拔河项目的人数为（　　）人。

A.13　　B.14　　C.15　　D.16

5.公司某部门新招了一个实习生，已知这个部门目前有四个人，分别是实习生、员工甲、员工乙、经理。员工甲一天的工作量是实习生的 2 倍，员工乙一天的工作量是实习生的 3 倍，经理一天的工作量是员工甲和员工乙工作量的总和。则经理一天的工作量是员工甲的（　　）倍。

A.3/5　　B.2/5　　C.5/2　　D.5/3

6.甲、乙两组都生产产品 A 和 B，已知甲组的 A、B 产量比是 3：2，乙组的 A、B 产量比是 7：3，甲组的 A、B 产量之和与乙组相同。这两组的产品 A 总产量与产品 B 总产量之比是（　　）。

A.2：1　　B.5：3　　C.9：5　　D.13：7

7.有一个分数，分子的 2 倍减 8 等于分母的 1/2，分子的 5 倍加 1 等于分母的 2 倍，则这个分数分子与分母的积为（　　）。

A.276　　B.308　　C.356　　D.418

8.某歌剧厅有若干观众，来了 20 名男观众后，男士人数是女士的 4 倍，又走了 5 名女观众，男士人数是女士的 8 倍，则最初歌剧厅有（　　）名观众。

A.30　　B.36　　C.42　　D.48

9.东部地区某校师生共为西部贫困地区捐款 2100 元，已知该校共有教师 31 人，共 13 个班级、每个班级人数相同，但人数大于 30 小于 40，如果平均捐款数为整数，则平均捐款为（　　）元。

A.3　　B.6　　C.4　　D.2

10.某单位有一笔设备采购预算可用于购买电脑、投影仪与打印机等办公设备，这笔费用可用于购买 22 台电脑，或者电脑、投影仪、打印机各 4 台。已知投影仪的单价为电脑与打印机的单价之和的两倍。则用这笔采购预算全部购买投影仪与打印机且刚好全部花完，最多可以买打印机（　　）台。

A.5　　B.22　　C.24　　D.26

11.现有 4 个盒子，每个盒中都装有 10 多个数量相同的小球，其中小球的颜色只有红色和黄色，已知这 4 个盒子中红色小球的总个数比黄色的小球多 1.2 倍，则这 4 个盒子中红色小球的总个数至少有（　　）个。

A.30　　B.32　　C.33　　D.40

12.一个三位数的十位数数字与百位数数字对调之后，所得三位数与原三位数之和为 1880。之差为 90。则该三位数组成数字的和为（　　）。

A.17　　B.20　　C.22　　D.24

13.A、B、C、D 四名运动员进行长距离游泳比赛，已知 A 比 B 快 2 分钟，C 比 A 慢 4 分钟，D 比 C 快 3 分钟。则 B 比 D（　　）。

A.快 1 分钟　　B.慢 1 分钟

C.快 3 分钟　　D.慢 3 分钟

14.某市需要修一座桥梁，现有甲、乙两个施工单位，已知甲、乙合作 12 天可完成桥梁的 7/8；如果甲、乙单独做，那么甲完成 1/2 与乙完成 2/3 所需要的时间相等。则甲单独做比乙单独做需要多用（　　）天。

A.6　　B.7　　C.8　　D.9

15.甲、乙两人加工一批配件，已知甲单独加工需要 15 小时才能完成，甲和乙的工作效率之比为 4：3。现在甲、乙两人一起加工了 5 小时，还剩下 200 个配件未加工，则这批配件的总数是（　　）个。

A.480　　B.450　　C.420　　D.390

16.某项工程，甲、乙、丙、丁四个人单独完成分别需要 16、12、16、20 小时。现按照甲、乙、丙、丁的顺序轮流来完成此项工程，每人每次 1 小时。当工程完成，则恰好轮到（　　）。

A.甲　　B.乙　　C.丙　　D.丁

17.部门一起做一个项目，为了加快进度，上级决定加派人员。如果能调来 16 人，则项目预计 10 天可以完成；如果只调来 4 人，则项目预计 20 天才能完成。则如果调走 2 人，完成项目预计需要（　　）天。

A.35　　B.40　　C.30　　D.24

18.甲、乙施工队共同修一条全长 20 千米的路，合作施工 25 天后乙队被调走，剩下部分甲队又用了 25 天正好完成。已知乙队的效率是甲队的 2 倍，问甲、乙两队合作每天可以修多少米路？（　　）

A.400　　B.600　　C.800　　D.1200

19.有两处消防水池，均含有同样多的水，一处配粗水管，可在 1 小时喷洒完所有的水，另一处配细水管，可在 2 小时喷洒完所有的水，现两处消防水池同时喷洒，若干分钟后，一处消防水池的剩余水量是另一处的 2 倍，则喷洒用时多少分钟？（　　）

A.30　　B.40　　C.35　　D.50

20.开凿一条地下通道，甲工程队单独挖需 4 天，乙工程队单独挖需 5 天，如果两队分别从通道两头同时挖，挖通时甲比乙多挖了 20 米，则这条地下通道的长度是（　　）米。

A.160　　B.180　　C.200　　D.220

21.某市对下辖 9 个文艺表演团体去年新创节目的数量进行统计分析，发现 9 个团体新创节目的数量恰好成等差数列，其中前 5 个团体的新创节目总数是 60，前 7 个团体的新创节目总数是 70。那么这 9 个文艺表演团体去年新创节目的总数是（　　）。

A.72　　B.76　　C.78　　D.80

22.已知某家族中 4 位成员的年龄总和为 142 岁，且他们的年龄恰好成等差数列，若其中一位的年龄为 47 岁，则这 4 人中最年长者的年龄为（　　）。

A.65 岁　　B.70 岁　　C.83 岁　　D.90 岁

23.某市共发行甲、乙、丙三种报纸。已知该市订购这三种报纸的人数分别为 45 万、32 万和 38 万。其中有 5 万人同时订购甲、乙两种报纸，有 8 万人同时订购甲、丙两种报纸，有

3 万人同时订购乙、丙两种报纸，有 1 万人同时订购甲、乙、丙三种报纸，则该市订购报纸的人数为（　　）万人。

A.115　　B.114　　C.100　　D.99

24.某班级学生总数是 32 人，在第一次考试中有 26 人及格，在第二次考试中有 24 人及格，若两次考试中都没及格的有 4 人，则两次考试都及格的人数是（　　）人。

A.18　　B.22　　C.26　　D.30

25.某工作组有 18 名外国工作者，其中 11 人会说汉语，9 人会说日语，8 人会说韩语，有 5 人既会说汉语又会说韩语，有 4 人既会说日语又会说韩语，有 3 人既会说汉语又会说日语，则只会一种工作语言的人数为（　　）。

A.9　　B.10　　C.11　　D.12

26.某研发小组员工中，60%的人参与了 A 项目，45%的人参与了 B 项目，两个项目都参与的人比两个项目都不参与的多 2 人。问该研发小组有多少人？（　　）

A.100　　B.50　　C.40　　D.20

27.某校有 105 名学生参加区上的数学和语文竞赛的初赛。初赛结束后，数学通过初赛的有 15 人，数学及语文竞赛均通过初赛的有 12 人，这两科都没有通过初赛的有 69 人。那么语文通过而数学未通过初赛的有多少人（　　）。

A.9　　B.21　　C.19　　D.24

28.现有一容器，装有 100 克浓度为 75%的盐水，从中倒出 40 克盐水后，再加入 40 克纯净水，如此反复三次。问此时盐水的浓度是（　　）。

A.0.90%　　B.1.62%　　C.9%　　D.16.20%

29.某容器内装满了浓度为 64%的酒精，现倒出 2 升该溶液后再加水注满容器，搅拌均匀后又倒出 2 升溶液后加水注满容器，此时溶液浓度变为 36%。则该容器的容积为（　　）升。

A.8　　B.9　　C.10　　D.12

30.A、B、C 三个试剂瓶中分别装有浓度为 20%、40%和 60%的酒精溶液各 100 克，现分别从 A、B、C 三个试剂瓶中取 60 克、40 克和 20 克酒精溶液混合，在混合后的酒精溶液中加入 30 克水。则该混合后的酒精溶液最终浓度为（　　）。

A.24%　　B.26.7%　　C.33.3%　　D.40%

31.现有一瓶浓度为 10%的溶液 1200 克，向该溶液中加入若干克浓度为 20%的溶液，使其变成浓度为 14%的溶液，则加入浓度为 20%的溶液共（　　）克。

A.504　　B.600　　C.800　　D.840

32.某商家以 500 元一个的售价卖出两个工艺品，以成本价作为标准量，其中一个工艺品盈利 15%，而另一个工艺品亏损 10%。则商家最终（　　）。

A.约赚 10 元　　B.约亏 10 元

C.约赚 12 元　　D.约亏 12 元

33.某商铺在销售商品时，先按商品进价的 150%标价。再按标价的 8.8 折进行销售，此时每件商品可获利 96 元，则该商品的进价为（　　）元。

A.270　　B.300　　C.330　　D.340

34.某商品每件成本 100 元，按标价出售，每天可售出 120 件，每件利润为成本的 20%。现在促销打 9 折。每天销量提高到原来的 3 倍。促销后每天的利润增加（　　）元。

A.440　　B.460　　C.480　　D.500

35.小李家附近有一家室内篮球馆。收费标准为 70 元/次，若购买年卡，可享以下优惠：

办卡类型	办卡费用（元）	单次收费（元）
A	60	55
B	120	45
C	180	40

若小李一年内在该球馆的打球次数介于 7 到 11 次之间，对他来说最省钱的方式为（　　）。

A.购买 A 类型年卡　　B.购买 B 类型年卡

C.购买 C 类型年卡　　D.不购买年卡

36.商场出售一台跑步机，所获得的利润为进价的 60%；若售价比原来高 50%，将获利 1400 元，则原来跑步机的售价是（　　）元。

A.933　　B.1000　　C.2800　　D.1600

37.某汽车美容店正在开展充值优惠洗车活动。其中，会员卡累计充值达到 1000 元可成为银卡会员，享受洗车 7 折优惠；累计充值达到 2000 元可成为金卡会员，享受洗车 6 折优惠；累计充值达到 3000 元可成为钻石会员，享受洗车 5 折优惠，已知洗车原价是 50 元/次，李师傅固定每月洗一次车，他最开始充值了 1000 元，半年后，又追加了 2000 元升级会员，升级后洗了 5 个月车，之后他准备将洗车会员卡以八折转让，则转让价格是多少元？（　　）

A.2665　　B.2132　　C.2640　　D.2112

38.某运动品专卖店以 990 元的价格分别出售了两个不同品牌的网球拍，其中一个获利 10%，另一个获利 25%，那么该专卖店销售这两个网球拍一共获利（　　）元。

A.168　　B.188　　C.268　　D.288

39.某小区党员自费租车组织外出参加红色教育主题活动，平均每人应付车费 42 元，后来又增加了若干人，这样每人应付的车费是 33 元，则租车费是（　　）元。

A.1265　　B.2024　　C.2772　　D.3165

40.某人花 10000 元买入一只股票，五天后他卖出了这只股票，净收益率为 3%，接着他把所得资金的 60%投入股票 A，余下的投入股票 B。三天后股票 A 下跌 1%，股票 A 和 B 的市值共计 9970.20 元。问此时股票 B 的市值是多少元？（　　）

A.3852　　B.4052　　C.4252　　D.4452

41.商场两次以相同的费用购进同一种物品，第一次该物品进货单价是 18 元，第二次该物品进货单价是 12 元，这两次所进物品混合在一起后的实际进货单价是（　　）元。

A.15　　B.14.4　　C.14　　D.13.4

42.某年 5 月 1 号为星期二，则该年 6 月 1 号为（　　）。

A.星期二　　B.星期三　　C.星期四　　D.星期五

43.小李、小张、小周三人的年龄之和为 35 岁，已知年龄最小的比年龄最大的小 10 岁。则年龄最小的最多可以是（　　）岁。

A.12　　B.10　　C.8　　D.6

44.小李一家有四口人，今年全家年龄之和为 67，母亲比父亲小两岁，姐姐比小李大三岁，四年前全家年龄之和为 52。姐姐今年的年龄是（　　）岁。

A.4　　B.5　　C.6　　D.8

45.1998 年 3 月 23 日是星期一，则 2021 年 9 月 17 日是（　　）。

A.星期三　　B.星期四　　C.星期五　　D.星期六

46.2006 年，小华父亲的年龄是小华的 7 倍。2031 年，小华父亲的年龄是小华的 2 倍，则 2022 年小华的年龄是（　　）岁。

A.5　　B.14　　C.21　　D.26

47.已知 2024 年是龙年，则 2049 年是（　　）。

A.兔年　　B.蛇年　　C.龙年　　D.马年

48.赵先生、钱先生和李先生三人都去健身房健身，赵先生每隔两天去一次，钱先生每隔三天去一次，李先生每隔四天去一次，他们三人 3 月 1 日在健身房相遇，那么下一次三人相遇的时间为（　　）。

A.3 月 31 日　　B.4 月 30 日

C.5 月 1 日　　D.5 月 12 日

49.一条东西向的河流宽 50 米，如下图所示，甲划船从北岸的 A 点出发，直线航行 130 米后到达南岸的 B 点，然后向左转向 90 度继续直线行驶，到达河流北岸的 C 点，问 A、C 两点的距离在以下哪个范围内？（　　）

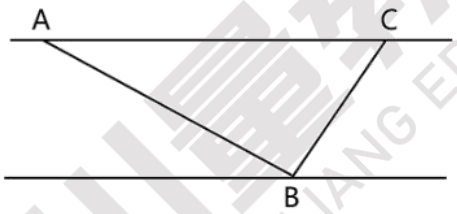

A.不到 150 米　　B.150～160 米之间

C.160～170 米之间　　D.超过 170 米

50.一个 300 米×200 米的池塘 ABCD，如下图所示。甲从 A 点划船出发依次经过 CD 边上的一点、AB 边上的一点后，最终到达 C 点。问最短行进距离在以下哪个范围内？（　　）

A.不到 690 米　　B.690~720 米之间

C.720~750 米之间　　D.超过 750 米

51.如下图所示，△ABC 中，AC=BC，∠ACB=30°，∠ADB=45°，那么边长 AB 是边长 CD 的多少倍？（　　）

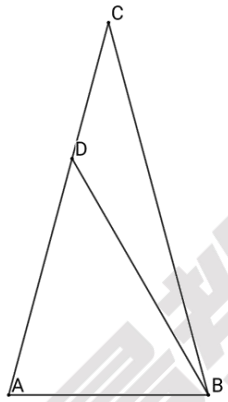

A.1　　B.$\sqrt{2}$　　C.$\sqrt{3}$　　D.2

52.一个边长为 8cm 的正立方体，由若干个边长为 1cm 的正立方体组成，现在要将大立方体表面涂漆，则被涂上了颜色的小立方体有（　　）个。

A.296　　B.324　　C.328　　D.384

53.某游泳池为长方体，其长是宽的 3 倍，高为 2 米。如果用每分钟可抽水 10 立方米的抽水机抽水，4 小时可以将水全部抽空。则该游泳池长（　　）米。

A.20　　B.40　　C.60　　D.80

54.一个容器的下部分为高 12 厘米的倒立圆锥体，上部分为圆柱体，且圆锥和圆柱的底面半径相等。现匀速向容器中注入水，1 分钟后液面高 6 厘米，又过 30 分钟后注满。问整个容器的高度为多少厘米？（　　）

A.22　　B.22.5　　C.23　　D.23.5

55.某院举办迎新晚会，要求院长和副院长从 20 名学生会干部中各推荐 2 人做主持人，结果恰好有 1 名同学同时被院长和副院长推荐的概率在（　　）区间内。

A.小于 10%　　B.10%～20%

C.20%～30%　　D.大于 30%

56.已知甲盒中有大小相同的 4 个红球和 3 个白球，乙盒中有大小相同的 5 个红球和 4 个白球，现从甲、乙盒中各取两个球。则取出 4 个白球的概率是（　　）。

A.1/42　　B.5/42　　C.5/126　　D.1/63

57.一个盒中装有大小相同，编号分别为 1、2、3、4、5、6、7、8、9 的 9 个球，现从中每次取出一个球后再放回，共取两次。则取得两个球的编号之和不小于 16 的概率为（　　）。

A.2/27　　B.1/12　　C.1/9　　D.5/72

58.要将不同的五种商品 A、B、C、D、E 在货柜上排成一排，其中 A、B 必须排在一起，C、D 不能排在一起。则有（　　）种不同的排列方式。

A.12　　B.20　　C.24　　D.48

59.有六位高中生，身高分别为 165cm、168cm、171cm、172cm、174cm、178cm。从这六名高中生中任意选两位，高度差为 3cm 的概率为（　　）。

A.1/5　　B.2/15　　C.4/15　　D.1/10

60.小李准备把 8 本不同的课外书平均分成 4 堆，每堆 2 本，共有（　　）种分法。

A.105　　B.630　　C.2520　　D.2800

61.科室组织运动会，有老年队和青年队两队，已知老年队 4 人，青年队 8 人。两个队已经排成了两列，现在为了人数统一，需要从青年队调取 2 位同志到老年队，如果其他人的相对位置不变，则排列有（　　）种。

A.30　　B.840　　C.420　　D.56

62.有 4 位老人，2 位青年，3 位小孩排成一列，老人不能相邻。则有（　　）种排列。

A.54300　　B.3000　　C.2880　　D.43200

63.现有五张卡片，分别标有 2，2，2，a，b，现抽取 3 次，则 1 次抽到字母，2 次抽到数字的概率是（　　）。

A.4/5　　B.3/5　　C.1/18　　D.1/5

64.因工作需要，某单位计划从其下属的 A、B 两个部门中随机抽调两人出差。其中，A 部门有 7 人，B 部门有 9 人。则两个部门各被抽调一人的概率为（　　）。

A.1/8　　B.21/40　　C.7/9　　D.21/80

65.甲、乙两地相距 60 千米，小李从甲地出发前往乙地，先匀速步行 40 千米，接着匀速骑行，骑行速度是步行的 2 倍，到达乙地后，小李发现步行距离所用的时间比骑行所用的时间多 3 小时，则小李步行的速度为（　　）千米/时。

A.6　　B.8　　C.10　　D.12

66.甲驾驶一艘小船在河中匀速行驶，已知顺水行驶 120 千米，用时 6 小时；在同样的水流速度下，逆水行驶 80 千米用时 8 小时。则甲驾驶这艘小船在静止水面上行驶 150 千米需要（　　）小时。

A.10　　B.9　　C.8　　D.12

67.甲匀速走路从 A 处到 B 处需要 25 分钟，乙匀速走路往返 A、B 两处之间需要 40 分钟；若两人同时从 A、B 两处出发相向而行，5 分钟之后，两人之间相距 440 米（甲、乙两人并未相遇），则 A、B 之间的距离为（　　）米。

A.910　　B.800　　C.770　　D.700

68.小王和小李在学校操场上匀速跑步，环形操场跑道长度 400 米，二人从同一位置背对背开始跑步，首次相遇时距离出发点位置 120 米，若二人一开始从出发点同向而行，则速度更快的人首次追上另一人时已经跑了（　　）米。

A.540　　B.620　　C.680　　D.700

69.一场马拉松比赛路线为往返设计，且间隔相同距离设置了若干补给站。某运动员全程保持匀速，从第 1 个补给站开始到第 6 个补给站共用时 40 分钟，他继续往前奔跑到达最后一

个补给站后折返到达第 5 个补给站，又用时 168 分钟。问沿途共有多少个补给站（　　）。

A.13　　B.14　　C.15　　D.16

70.某班有 7 名学生参加了数学竞赛，已知 7 名学生的得分各不相同且均为整数，满分为 100 分。若将 7 人分数从高到低依次排名，第四名学生的得分比后三名学生得分的平均分高 5 分，且前四名学生的总分比后四名学生的总分高 30 分，则第四名学生最高得（　　）分。

A.93　　B.94　　C.96　　D.97

71.某电脑制造厂商生产销售一批电脑。每台电脑成本价格为 4499 元，销售价格为 5699 元。某单位计划以销售原价购买 20 台电脑，在此基础上，若销售价格每降低 100 元，就多购买 2 台。则该电脑制造厂商可在该笔交易中可获得的最大利润为（　　）元。

A.24200　　B.24000　　C.36000　　D.31200

72.老年大学的学员一起组织去花博会游玩。花博会全价票是 100 元。其中 60 岁以上但未满 70 岁的老人享受半价票，70 岁以上老人免票，夫妻可享受双人全价票打五折。已知班级学员共有 50 人，其中 60 岁以下有 15 人，70 岁以上有 3 人且 70 岁以上有一人携带妻子。夫妻共有 10 对，其中 3 对年龄均在 60 岁以下，则所有人购票后，最少应支付（　　）元。

A.3200　　B.2650　　C.2800　　D.2600

73.张师傅新搬家不久。某天酒后回家，忘记了哪把钥匙开哪把锁，而一把钥匙只能开一把锁。现在他有 4 把钥匙要将 4 道门都打开，他最多只试（　　）次就能全部打开。

A.9　　B.10　　C.15　　D.12

74.规定有以下运算法则：有 M⊕N=M^2+N^2-MN，M⊙N=MN-M-N，根据运算法则，(5⊙4) ⊕3=（　　）。

A.11　　B.33　　C.130　　D.97

75.某病毒毒株具备强传染性，已知最开始仅有 1 名感染此病毒的人，经过 2 轮传播后，已有 169 名感染者。则该毒株每轮传播中，平均一人传染（　　）人。

A.12　　B.11　　C.13　　D.14

76.现有 4 名工作人员需要将 8 名老年人转移，途中将经过一条河，只有 1 条小船可以渡河。小船每次最多载 4 人，老年人须有工作人员陪同，且为了保证安全，每名工作人员最多负责 4 名老年人。如小船一来一回算作一趟，则至少需要（　　）趟才能将老年人送过河。

A.5　　B.2　　C.3　　D.4

77.小陆去奶厂订牛奶，如果自带容器，每装 500 毫升奶，价格 6 元；如果用奶厂原装奶瓶，每瓶 450 毫升，价格 8 元，且每 3 个空奶瓶可兑换 1 瓶牛奶。本月小陆订牛奶共花费 300 元，家里剩余 1 个空奶瓶。则小陆最多可得到（　　）升牛奶。

A.24.85　　B.25.9　　C.25　　D.24.45

78.某小学成立了一个兴趣小组，小张在兴趣小组中年龄排名第 4，且在兴趣小组男生里年龄排第 2 位。已知兴趣小组每个女生都有 3 个年龄比她小的男生和 1 个比她大的男生，则

兴趣小组共有（　　）人。

A.6　　B.5　　C.8　　D.7

79.有一座长度为 1264 米的大桥，现要在桥上两侧安装路灯（两端都要装），每侧两盏路灯之间的距离为 16m，则这座大桥一共需要安装（　　）盏路灯。

A.79　　B.80　　C.158　　D.160

80.某单位两座办公楼之间有一条长 204 米的道路，在道路起点的两侧和终点的两侧已各栽种了一棵树。现在要在这条路的两侧栽种更多的树，使每一侧每两棵树之间的间隔不多于 12 米。如果每棵树需要 50 元人工费，则为完成栽种工作，人工费这一项至少需要（　　）预算。

A.800 元　　B.1600 元　　C.1700 元　　D.1800 元

81.某社区欲在一块边长为 50 米的正方形广场四周栽树，若沿广场四周每隔 1 米栽一棵树，则栽满四周，一共需要（　　）棵树。

A.200　　B.201　　C.202　　D.199

82.学校举办教师趣味运动会，教师自行分为甲、乙两队，甲队 20 人，乙队 12 人。为均衡两队实力，现将甲队中最年轻的 4 人调入乙队，则乙队平均年龄减少了 1 岁，甲队平均年龄增加了 2 岁。问调动之前，两队平均年龄相差多少岁？（　　）

A.4　　B.5　　C.6　　D.7

83.在大于 50 且小于 100 的连续 10 个自然数中，最多有（　　）个质数。

A.1　　B.2　　C.3　　D.4

84.有一排椅子共 27 个座位，至少要坐（　　）人，才能使后去的人无论坐哪个座位都有人与他相邻。

A.11　　B.10　　C.9　　D.8

川量教育 CHUANLIANG EDUCATION

第四部分 资料分析

第一章 速算技巧

1.75579÷988=（　　）。

A.50.8　　B.76.5　　C.66.2　　D.20.7

2.49283-30391=（　　）。

A.3501　　B.7906　　C.12545　　D.18892

3.98、103、115、95、105 的平均数是（　　）。

A.98.2　　B.100　　C.103.2　　D.105

4.70381÷150=（　　）。

A.457.7　　B.469.2　　C.481.0　　D.420.5

5.465×16.7%=（　　）。

A.67.5　　B.72.5　　C.77.5　　D.82.5

6.$\frac{125}{2707}$=（　　）。

A.1.9%　　B.2.8%　　C.3.5%　　D.4.6%

7. $\frac{254}{248}$ =（　　）。

A.100.4%　　B.101.4%　　C.102.4%　　D.103.4%

8.465×48%=（　　）。

A.223.2　　B.232.5　　C.237.2　　D.230.5

9.5899+9230+8964+2712=（　　）。

A.26805　　B.23005　　C.24205　　D.21105

10.5365+2917+3176+7144=（　　）。

A.41302　　B.30902　　C.18602　　D.17102

11.1457+437+862+452=（　　）。

A.2668　　B.2860　　C.3080　　D.3208

12.54830÷370=（　　）。

A.148.2　　B.652.8　　C.912.6　　D.523.8

(一)

2021 年末，全国人口为 141260 万人；全年出生人口 1062 万人，比 2020 年减少 140 万人；死亡人口 1014 万人，比 2020 年增加 16 万人。人口出生率为 7.52‰，比 2020 年下降 1.00 个千分点；人口死亡率为 7.18‰，微升 0.11 个千分点。

2021 年人口自然增长率为 0.34‰，比 2020 年下降 1.11 个千分点。人口增长持续放缓是由于出生人口继续减少，这主要受两方面因素影响。

一是育龄妇女人数持续减少。2021 年 15—49 岁育龄妇女比 2020 年减少约 500 万人，其中 21—35 岁育龄妇女减少约 300 万人。二是生育水平继续下降。受生育观念转变、初婚初育年龄推迟等多方面的影响，2021 年育龄妇女总和生育率继续下降。

2021 年末，全国 0—15 岁人口为 26302 万人，占全国人口的 18.6%；16—59 岁人口为 88222 万人，占 62.5%；60 岁及以上人口为 26736 万人，占 18.9%，其中，65 岁及以上人口为 20056 万人，占 14.2%。与 2020 年相比，0—15 岁人口减少 528 万人，16—59 岁人口增加 247 万人，60 岁及以上人口增加 329 万人。

1.2021 年，全国出生人口同比约（　　）。

A.增长 11.6%　　B.增长 13.2%

C.下降 11.6%　　D.下降 13.2%

2.2021 年全国净增人口约是 2020 年的（　　）倍。

A.0.11　　B.0.24　　C.4.25　　D.8.75

3.如果 2020—2021 年全国 15—20 岁育龄妇女数量保持不变，则 2021 年比 2020 年减少约 200 万人的人群为（　　）。

A.21—30 岁育龄妇女　　B.31—45 岁育龄妇女

C.36—45 岁育龄妇女　　D.36—49 岁育龄妇女

4.2020 年末，全国 0—59 岁人口占总人口比重约为（　　）。

A.19%　　B.62.3%　　C.73.2%　　D.81.3%

5.根据资料，下列推断正确的是（　　）。

A.2021 年，全国中年人口正在减少

B.2021 年，全国人口增长持续放缓主要是由于死亡率上升

C.2021 年末，全国 0—15 岁人口同比下降超 2%

D.2021 年，全国老龄化加剧

（二）

我国货物进出口总额

指标	2020 年金额(亿元)	2021 年金额（亿元）	2022 年金额 (亿元)
货物进出口总额	321557	391009	420678
货物出口额	179326	217348	239654
其中：一般贸易	106460	132445	152468
加工贸易	48589	53378	53952
其中：机电产品	106608	128286	136973
高新技术产品	53692	63266	63391
货物进口额	142231	173661	181024
其中：一般贸易	86048	108395	115624
加工贸易	27853	31601	30574
其中：机电产品	65625	73657	69661

高新技术产品	47160	54088	50864

1.2022 年高新技术产品出口额同比增速比 2021 年的同比增速（　　）。

A.增加超 10%　　B.下降超 10%

C.增加不到 10%　　D.下降不到 10%

2.2020—2022 年，货物出口额中，一般贸易、加工贸易、机电产品、高新技术产品占货物出口额比重逐年下降的有（　　）个。

A.1　　B.2　　C.3　　D.4

3.2022 年，一般贸易、加工贸易、机电产品、高新技术产品进口额中同比增速最大的与最小的相差约（　　）。

A.12.6%　　B.0.7%　　C.9.9%　　D.3.4%

4.2020—2022 年，一般贸易、加工贸易、机电产品、高新技术产品进口额占货物进口总额的比重变化为先升再降的有（　　）个。

A.3　　B.2　　C.1　　D.0

5.能够从上述资料中推出的是（　　）。

A.2020—2022 年，我国货物贸易顺差持续缩小

B.2020—2022 年，一般贸易、加工贸易、机电产品、高新技术产品中，只有一般贸易的进口额变化与出口额变化趋势一致

C.2020—2022 年，一般贸易的进出口额占货物进出口总额的比重均超过了 60%

D.随着我国高新技术的发展，高新技术产品的货物进口额将会减少

川量教育
CHUANLIANG EDUCATION

第二章 常考题型

(一)

2022 年 1 月—2023 年 2 月全国旅游客车产销量情况

单位：辆（数量）、%（增速）

时间	产量		销量	
	数量	增速	数量	增速
2022 年 1 月	714	93.0	581	24.2
2022 年 2 月	140	-51.4	196	-10.5
2022 年 3 月	468	2.0	492	28.5
2022 年 4 月	426	8.1	372	-24.5
2022 年 5 月	581	7.4	613	5.9
2022 年 6 月	664	-33.7	516	-46.1
2022 年 7 月	494	-11.9	314	-32.9
2022 年 8 月	138	1.5	260	-32.0
2022 年 9 月	329	-15.2	325	3.2
2022 年 10 月	287	7.1	291	-10.2
2022 年 11 月	336	-24.8	285	-25.2
2022 年 12 月	353	-68.1	331	-40.5
2023 年 1 月	436	-38.9	284	-51.1
2023 年 2 月	188	34.3	275	40.3

1.2022 年，全国旅游客车销量最高的季度是（　　）。

A.第一季度　　B.第二季度　　C.第三季度　　D.第四季度

2.2022 年 1 月，全国旅游客车产量约比上月（　　）。

A.增长了 15%　　B.增长了 35%

C.下降了 15%　　D.下降了 35%

3.2022 年 1～12 月，全国旅游客车产销比（销量/产量）相较于 2021 年同期增加的月份有几个？（　　）

A.5　　B.6　　C.7　　D.8

4.2023 年 2 月，全国旅游客车销量约是 2021 年 2 月的（　　）。

A.1.3 倍　　B.1.5 倍　　C.1.7 倍　　D.1.9 倍

5.以下柱状图反映了 2022 年哪一时间段内。全国旅游客车产量环比增量的变化趋势（横轴位置代表 0）？（　　）

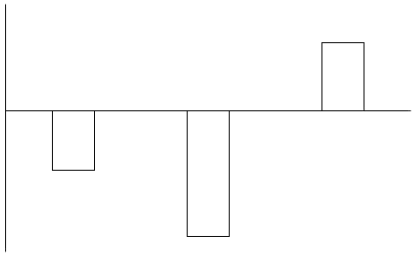

A.3-5 月　　B.5-7 月　　C.7-9 月　　D.9-11 月

(二)

1.2021 年第一季度，F 省饮料产量在以下哪个范围内？（　　）

A.不到 240 万吨　　B.240 万吨～270 万吨之间

C.270 万吨～300 万吨之间　　D.超过 300 万吨

2.2023 年 1—4 月，F 省饮料产量比上年同期下降了（　　）。

A.不到 7%　　B.7%～14%之间

C.14%～21%之间　　D.21%以上

3.2022 年下半年，F 省饮料产量同比增量超过 6 万吨的月份有几个？（　　）。

A.2　　B.3　　C.4　　D.5

4.如 2023 年 5 月 F 省饮料产量同比增量与上年同期相同，则 2023 年 5 月 F 省饮料产量比上个月增加了（　　）。

A.不到 20%　　B.20%～30%之间

C.30%～40%之间　　D.40%以上

5.以下柱形图反映了 2022 年哪一时间段内，F 省饮料产量环比增量的变化趋势（横轴位置代表 0）？（　　）

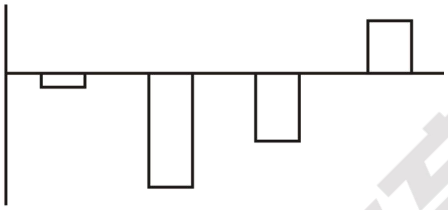

A.4-7 月　　B.5-8 月　　C.7-10 月　　D.9-12 月

(三)

2023 年前三季度，S 省 1627 家规模以上文化及相关产业企业（以下简称“文化企业”）实现营业收入 862.76 亿元，比上年同期增长 7.0%，低于全国总体水平 0.7 个百分点，增速较第一季度和上半年分别回落 3.8 和 1.9 个百分点。

分产业类型看，文化服务业企业共 1076 家，实现营业收入 409.84 亿元，比上年同期增长 6.7%。文化批发和零售业企业共 321 家，实现营业收入 190.49 亿元，比上年同期增长 27.6%，文化制造业企业共 230 家，实现营业收入 262.42 亿元，比上年同期下降 3.9%。

分领域看，文化核心领域实现营业收入 533.10 亿元。比上年同期增长 13.0%，增速高于上年同期 4.3 个百分点；文化相关领域实现营业收入 329.66 亿元，比上年同期下降 1.6%。

在文化核心领域中，文化传播渠道，创意设计服务，新闻信息服务，文化娱乐休闲服务，内容创作生产和文化投资运营 6 个行业营业收入分别为 172.24 亿元、132.86 亿元、104.88

亿元、32.66 亿元、81.03 亿元和 9.43 亿元，分别比上年同期增长 28.2%、8.3%、3.0%、12.6%、9.3%和-2.1%。在文化相关领域中，文化装备生产，文化消费终端生产，文化辅助生产和中介服务 3 个行业营业收入分别为 99.45 亿元、92.78 亿元和 137.43 亿元，分别比上年同期增长 19.6%、0.1%和-13.6%。

1.2023 年前三季度，S 省平均每家文化企业实现营业收入在以下哪个范围内？（　　）

A.不到 0.5 亿元　　B.0.5 亿元～1 亿元之间

C.1 亿元～1.5 亿元之间　　D.超过 1.5 亿元

2.2022 年前三季度，S 省文化相关领域实现营业收入比文化核心领域（　　）。

A.低不到 50%　　B.低 50%以上

C.高不到 50%　　D.高 50%以上

3.将 S 省①创意设计服务、②文化装备生产、③文化消费终端生产和④文化辅助生产和中介服务，按 2022 年前三季度营业收入从高到低排列，以下正确的是（　　）。

A.①②④③　　B.①④②③　　C.④①②③　　D.④①③②

4.以下饼图中，最能准确反映 2023 年前三季度 S 省文化企业营业收入中三个产业类型占比情况的是（　　）。

A.
B. 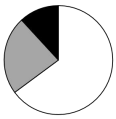
C.
D.

5.以下信息中，能够从上述资料中推出的有几项？（　　）

①2021 年前三季度 S 省文化核心领域实现营业收入

②2023 年上半年 S 省文化企业实现营业收入同比增速

③2023 年前三季度全国文化企业实现营业收入同比增速

A.0　　B.1　　C.2　　D.3

(四)

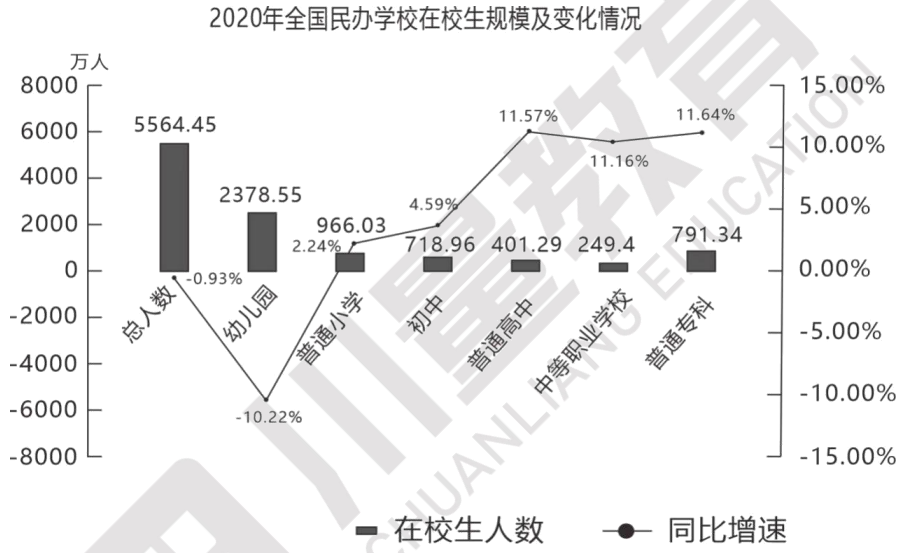

1.2020 年，民办普通小学在校生人数比 2019 年增加约（　　）万人。

A.21.26　　B.22.13　　C.24.15　　D.26.97

2.2020 年，上述民办教育在校生人数规模最大的阶段中，在校生人数约占民办教育在校生人数总量的（　　）。

A.11.64%　　B.42.75%　　C.35.78%　　D.54.12%

3.上述民办教育的六个阶段中，2020 年在校生人数同比增加最多的前三名的是（　　）。

A.普通专科、普通高中、初中　　B.普通专科、普通高中、普通小学

C.普通小学、普通高中、初中　　D.普通专科、普通高中、中等职业学校

4.2020 年，在上述民办教育的六个阶段中，在校生人数同比增速最大的两个阶段的在校生人数是同比增速最小的两个阶段的在校生人数的（　　）倍。

A.2.80　　B.1.63　　C.0.48　　D.0.36

5.根据上述资料，下列说法正确的是（　　）。

A.2020 年，民办教育规模扩大了

B.2020 年，民办幼儿园比公办幼儿园在校生人数多

C.2020 年，全国民办教育不止六个阶段

D.2019 年，民办幼儿园在校生人数比上述其他五个阶段在校生人数的总量多

（五）

2020 年，四川省投入 R&D 经费（研发和试验经费）总量首次突破 1000 亿元，达到 1055.3 亿元，比 2016 年增加 493.9 亿元。全省 R&D 经费投入强度（R&D 经费占 GDP 的比重）创新高，达到 2.17%，比 2016 年提高 0.45 个百分点。其中，各类企业投入 R&D 经费 547.4 亿元，占全社会 R&D 经费的比重为 51.9%，比重比 2016 年提升 6.1 个百分点；科研机构投入 R&D 经费 416.6 亿元，比 2016 年增长 45.7%。2020 年，成都市投入 R&D 经费 551.4 亿元，其在 2016 年投入 R&D 经费只有 289.1 亿元；绵阳市投入 R&D 经费 215 亿元，比 2016 年增加 86.9 亿元，增长 67.8%，R&D 经费投入强度达 7.14%，比 2016

年提升 0.14 个百分点。从区域来看，2020 年四川省五大区域 R&D 经费中，成都平原经济区投入 R&D 经费 898.2 亿元，比 2016 年增加 411.4 亿元，增长 84.5%。川南经济区、川东北经济区、攀西经济区和川西北生态示范区投入 R&D 经费分别为 83.9 亿元、50.3 亿元、21.1 亿元和 1.8 亿元，比 2016 年分别增长 99.3%、212.4%、33.5%和 174.8%。

1.2016 年，四川省 R&D 经费为（　　）亿元。

A.1549.2　　B.1055.3　　C.493.9　　D.561.4

2.2016 年，四川省各类企业投入 R&D 经费约为（　　）亿元。

A.250.8　　B.257.1　　C.284.1　　D.516.4

3.与 2016 年相比，2020 年成都市 R&D 经费投入增长了约（　　）。

A.90.7%　　B.51.5%　　C.69.1%　　D.88.3%

4.2020 年成都市 R&D 经费投入占全省的比例比 2016 年提高了约（　　）个百分点。

A.0.2　　B.0.8　　C.2　　D.8

5.首位区域的首位度是指在某个领域，处在首位的区域与规模第二大区域的比值。根据首位度的定义，2020 年四川省五大区域 R＆D 经费中，成都平原经济区的首位度约为（　　）。

A.10.7　　B.1.7　　C.4.2　　D.499

(六)

表 2020—2021 年我国共享经济发展概况

领域	市场交易额（亿元）	
	2020 年	2021 年
交通出行	2276	2344
共享住宿	158	152
知识技能	4010	4540
生活服务	16175	17118
共享医疗	138	147
共享办公	168	212
生产能力	10848	12368
总计	33773	36881

1.2021 年共享经济市场交易额萎缩的领域为（　　）。

A.生活服务　　B.共享住宿　　C.共享办公　　D.交通出行

2.2021 年市场交易额同比增长最多的共享经济领域为（　　）。

A.生活服务　　B.知识技能　　C.交通出行　　D.生产能力

3.2021 年市场交易额同比增速第一、二的两个共享经济领域占总市场交易额的占比约为（　　）。

A.12.9%　　B.34.1%　　C.52.8%　　D.80.1%

4.与 2020 年相比，2021 年知识技能市场交易额占总市场交易额的比重约（　　）。

A.提高了 4 个百分点　　B.提高了 0.4 个百分点

C.下降了 4 个百分点　　D.下降了 0.4 个百分点

5.2021 年市场交易额同比增速超出全年平均值的共享经济领域有（　　）个。

A.2　　B.3　　C.4　　D.5

（七）

本题假设全国医疗卫生机构由医院、社区卫生服务中心（站）、乡镇卫生医院组成。

图1 全国医疗卫生机构数

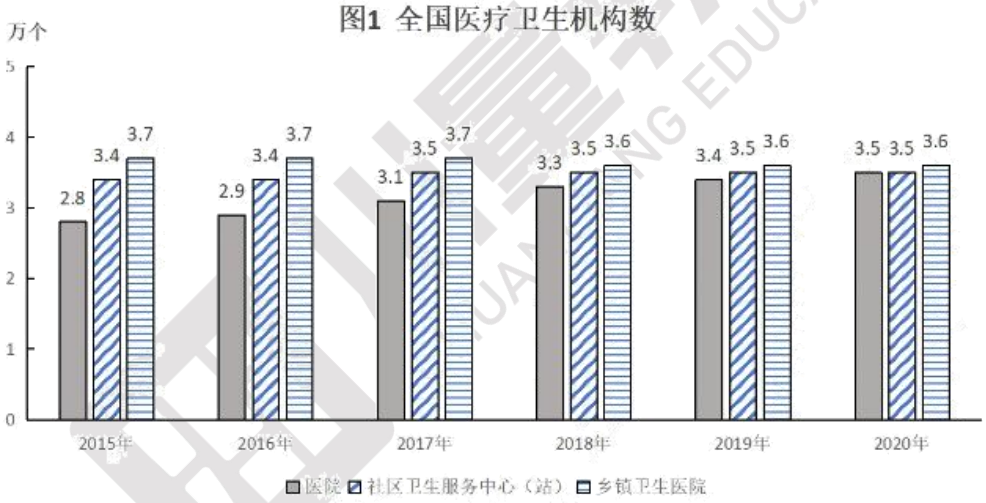

图2 全国医疗卫生机构床位数

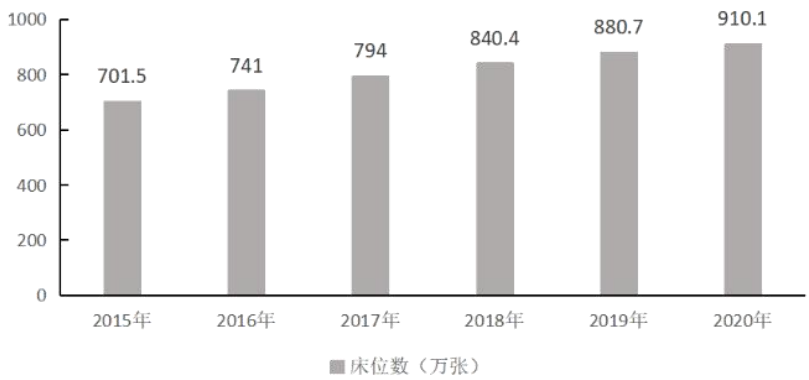

1.2019 年全国医疗卫生机构总数比 2015 年增长了约（　　）个百分点。

A.0.61　　B.0.58　　C.5.8　　D.6.1

2.2018 年，乡镇卫生医院数量同比增速比社区卫生服务中心（站）约（　　）。

A.低 3.4 个百分点　　B.高 3.4 个百分点

C.低 2.7 个百分点　　D.高 2.7 个百分点

3.2016—2020 年，全国医疗卫生机构床位数同比增速最高的年份的床位数比同比增速最低的年份的床位数（　　）。

A.多 99.4 万张　　B.少 99.4 万张

C.多 116.1 万张　　D.少 116.1 万张

4.2020 年全国平均每个医疗卫生机构床位数比 2015 年增长约（　　）。

A.13.9%　　B.16.9%　　C.17.5%　　D.21.1%

5.下列能够从资料中推出的是（　　）。

A.2020 年，全国平均每个医疗卫生机构床位数同比增长超过 10%

B.与 2015 年相比，2020 年全国医疗卫生机构床位数增幅未超过 30%

C.2015—2020 年，全国医疗卫生机构床位数同比增速不断下降

D.2018 年全国平均每个医疗卫生机构床位数不足 80 张

（八）

2024 年二季度，A 市市场总消费额同比增长 5.8%。其中，服务性消费额增长 12.0%，文旅需求旺盛，交通、信息服务持续向好；实现社会消费品零售总额 3553.1 亿元，下降 0.1%。社会消费品零售总额中，按消费形态分，商品零售 3235.0 亿元，下降 0.2%，餐饮收入 318.0 亿元，增长 0.1%。按商品类别分，限额以上批发和零售业中，与升级类消费相关的金银珠宝类、体育娱乐用品类、通讯器材类商品零售额分别增长 24.7%、12.7%和 7.6%，汽车类商品零售额增长 2.3%，其中新能源汽车增长 18.9%。

二季度全市居民人均可支配收入 22481 元，环比增长 5.2%，高于第一季度的环比增速 0.8 个百分点。其中，工资性收入增长 6.5%，经营净收入增长 0.4%，财产净收入增长 2.5%，转移净收入增长 3.3%。城镇居民人均可支配收入 24210 元，环比增长 5.0%，农村居民人均可支配收入 11305 元，环比增长 7.1%。

二季度全市居民人均消费支出 13034 元，其中，城镇居民人均消费支出 13938 元，环比增长 8.3%，农村居民人均消费支出 7190 元，环比增长 7.2%。

1.2024 年一季度，A 市农村居民人均可支配收入约为（　　）元。

A.9682.1　　B.9854.1　　C.10129.2　　D.10555.6

2.2024 年二季度，A 市居民人均可支配收入与 2023 年四季度相比约（　　）。

A.增长了 8.5%　　B.增长了 9.8%

C.下降了 8.5%　　D.下降了 9.8%

3.2024 年二季度，A 市居民人均消费支出环比增速在以下（　　）范围之内。

A.6.9%～7.2%　　B.7.2%～7.75%

C.7.75%～8.3%　　D.8.3%～9.0%

4.2024 年二季度，城镇居民人均消费支出约是农村居民人均消费支出的（　　）倍。

A.1.5　　B.1.9　　C.2.2　　D.2.7

5.从上述资料中，可以推出的一项是（　　）。

A.2024 年一季度，A 市城镇居民人均消费支出

B.2023 年一季度，A 市居民人均可支配收入

C.2024 年二季度，A 市新能源汽车零售额

D.2024 年一季度，A 市市场总消费额

（九）

社会消费品零售总额中限上企业（2024 年 5 月）				
指标名称	本月	本月±%	本月止累计	累计±%
消费品零售额（亿元）	803.0	2.0	4078.0	47.0
一、餐饮收入	72.4	8.8	379.2	12.2
其中：通过互联网实现的餐饮收入	5.4	101.8	25.2	94.4
二、商品零售	730.6	1.4	3707.8	4.0
其中：通过互联网实现的商品零售额	148.2	8.8	669.3	4.9
（一）粮油、食品、饮料、烟酒类	139.3	11.5	745.4	14.8
（二）服装、鞋帽、针纺织品类	46.1	-3.8	242.7	-1.7

（三）化妆品类	11.1	3.1	53.1	1.8
（四）金银珠宝类	48.0	-14.8	30.4	2.8
（五）日用品类	31.3	13.1	160.7	8.8
（六）体育、娱乐用品类	7.7	47.3	28.4	12.8
（七）书报杂志类	13.6	-4.7	53.2	1.9
（八）家用电器和音像器材类	46.8	9.1	214.8	0.0
（九）中西药品类	36.8	14.1	179.2	12.7
（十）文化办公用品类	11.8	12.3	62.5	22.0
（十一）家具类	9.7	24.8	45.1	1.9
（十二）通讯器材类	27.8	25.3	96.9	-12.2
（十三）石油及制品类	121.0	-0.4	630.0	0.8
（十四）建筑及装潢材料类	8.0	9.6	43.5	12.5
（十五）汽车类	198.1	-11.6	1035.1	0.0
（十六）其他类	16.8	4.3	86.8	3.8

注：表中增长率为环比增长率

1.2024 年 4 月，通过互联网实现的餐饮收入约为（　　）亿元。

A.2.5　　B.2.7　　C.2.9　　D.3.1

2.2024 年 5 月，粮油、食品、饮料、烟酒类商品零售额的增加值约为（　　）亿元。

A.13.1　　B.14.4　　C.15.8　　D.16.3

3.2024 年 5 月，汽车类商品零售额在商品零售额中的占比较 4 月（　　）。

A.上升了 4%　　B.上升了 2%　　C.下降了 4%　　D.下降了 2%

4.2024 年 5 月，商品零售中零售额增速超过 10%的品类有（　　）。

A.6 个　　B.7 个　　C.8 个　　D.9 个

5.根据资料，下列说法错误的有几项？（　　）

①2024 年 1～4 月，餐饮收入平均每月超过 85 亿元

②2024 年 4 月，石油及制品类商品零售额约为化妆品类商品零售额的 11 倍

③若保持 2024 年 5 月的环比增速不变，2024 年 6 月通过互联网实现的商品零售额将会超过 160 亿元

A.0 项　　B.1 项　　C.2 项　　D.3 项

（十）

2020 年某市开展了市民阅读情况调查。调查采取随机抽样方式，访问了本市 12 周岁以上的 1000 名市民。

调查显示，多数受访者保持每天阅读的良好习惯。其中，阅读时间在 1～2 小时的为 44.8%，2～3 小时的为 11.6%，3 小时以上的为 7.5%。

表 1　市民每天阅读时间分布

年龄	1 小时以下	1~2 小时	2~3 小时	3 小时以上
12~20 岁	12.1%	63.6%	9.1%	15.2%
21~40 岁	37.3%	44.2%	10.5%	8.0%

41~60 岁	37.2%	44.9%	11.3%	6.6%
61 岁及以上	35.4%	43.1%	15.5%	6.0%

42.8%的受访者每年阅读量在 1～6 本书，10.8%的阅读量在 7～12 本书，10.5%的阅读量在 13 本及以上。

表 2 市民每年读书的数量分布

年龄	0 本	1~6 本	7~12 本	13 本及以上
12~20 岁	3.0%	57.6%	18.2%	21.2%
21~40 岁	20.8%	53.2%	13.9%	12.1%
41~60 岁	53.4%	31.6%	6.1%	8.9%
61 岁及以上	63.0%	24.3%	6.6%	6.1%

当被问及没有更多时间阅读的原因时，57.9%的受访者选择“工作学习太忙”，比重最高；其次为“家务太多”，比重为 28.7%；“没有值得读的好书”“娱乐活动太多”“对阅读不感兴趣”“书价太贵”的比重依次为 17.5%、18.1%、10.3%、23.5%。

1.将没有更多时间阅读的原因按选择人数从多到少排序，排名第三的是（　　）。

A.书价太贵　　B.娱乐活动太多

C.对阅读不感兴趣　　D.没有值得读的好书

2.受访者中每天阅读时间在 1 小时以上的有（　　）人。

A.448　　B.523　　C.564　　D.639

3.受访者中，平均阅读时间与所有受访者的平均阅读时间差别最大的年龄段是（　　）。

A.12～20 岁　　B.21～40 岁

C.41～60 岁　　D.61 岁及以上

4.下列与受访者中不读书人数比例最接近的是（　　）。

A.12～20 岁受访者中每天读书 1～2 小时者的比例

B.21～40 岁受访者中每年读书 7～12 本者的比例

C.41～60 岁受访者中每年读书 1～6 本者的比例

D.61 岁及以上受访者中每天读书 1 小时以下者的比例

5.根据以上资料，下列说法正确的是（　　）。

A.大部分受访者每年读书在 6 本以上

B.40 岁以上的受访者中有一半以上的人一年不读书

C.受访者中每年阅读量在 13 本及以上者不到 100 人

D.绝大多数 12～20 岁的受访者每天阅读时间在 3 个小时以上

（十一）

2019 年 M 省 2 月三个高速公路 M 段交通流量

指标	X 高速	Y 高速	Z 高速
M 段交通流量（辆）	52024	32002	33583
7 座以下（%）	51.51	51.21	52.25
8~19 座客车、2 吨以下（含 2 吨）货车（%）	19.01	16.97	15.96

20~39 座客车、2~5 吨（含 5 吨）货车（%）	8.78	15.2	23.22
40 座客车、5~10 吨（含 10 吨）货车（%）	13.81	15.39	8.32
10~15 吨（含 15 吨）货车（%）	2.17	0.92	0.19
15 吨以上货车（%）	?	0.31	0.06
高速全段（辆）	101215	50068	65307

1.X 高速 M 段，15 吨以上货车约占（　　）。

A.2.84%　　B.4.53%　　C.4.72%　　D.6.32%

2.X 高速 M 段的平均每日交通流量比 Y 高速 M 段约多（　　）。

A.86.2%　　B.62.6%　　C.30.4%　　D.29.5%

3.X 高速 M 段，8～19 座客车，2 吨以下（含 2 吨）货车的数量约为 20～39 座客车、2 吨～5 吨（含 5 吨）货车数量的（　　）。

A.0.76 倍　　B.1.12 倍　　C.1.94 倍　　D.2.17 倍

4.X 高速 M 段通行的 7 座以下客车比 Z 高速 M 段约（　　）。

A.多 0.92 万辆　　B.少 0.92 万辆

C.多 2.87 万辆　　D.少 2.87 万辆

5.根据上述资料，可以推断出来的是（　　）。

A.Z 高速 M 段 10 吨以下货车最少

B.春节期间，大部分人选择乘坐客车返家

C.三条高速公路中，M 段承载了大半交通压力

D.X 高速 M 段交通流量在全程交通流量中占比最大

(十二)

2020 年全国城镇非私营单位就业人员年平均工资为 67569 元，同比增长 8.93%，增速比 2019 年回落 1.2 个百分点。分四大区域看，东部地区 77013 元，同比增长 9.1%；西部地区 62453 元，同比增长 9.0%；中部地区 55299 元，同比增长 8.8%；东北地区 54872 元，同比增长 7.5%。

2020 年城镇非私营单位就业人员分行业年平均工资

行业	平均工资（元）	增长率（%）
农、林、牧、渔业	33612	5.2
采矿业	60544	1.9
制造业	59470	7.5
电力、热力、燃气及水生产和供应业	83863	6.3
建筑业	52082	6.5
批发和零售业	65051	7.8
交通运输、仓储和邮政业	73650	7
住宿和餐饮业	43382	6.3
信息传输、软件和信息技术服务业	122478	9.3
金融业	117418	2.3
房地产业	65497	8.7

租赁和商务服务业	76782	5.9
科学研究和技术服务业	96638	8.1
水利、环境和公共设施管理业	47750	9.7
居民服务、修理和其他服务业	47577	6.2
教育	74498	11.9
卫生和社会工作	80026	11.7
文化、体育和娱乐业	79875	9.8
公共管理、社会保障和社会组织	70959	13.9

1.2019 年全国城镇非私营单位就业人员月平均工资为（　　）。

A.4865 元　　B.4923 元　　C.5169 元　　D.6571 元

2.2020 年全国四大区域城镇非私营单位人员最高年平均工资和最低年平均工资之比为（　　）。

A.1.1　　B.1.2　　C.1.3　　D.1.4

3.2020 全国城镇非私营单位 19 个行业门类中，就业人员年平均工资增速高于全国平均水平的有（　　）。

A.4 个　　B.5 个　　C.6 个　　D.7 个

4.2020 年全国城镇非私营单位平均工资最低的行业是（　　）。

A.住宿和餐饮业　　B.农、林、牧、渔业

C.文化、体育和娱乐业　　D.水利、环境和设施管理业

5.根据上述材料，下列说法不正确的是（　　）。

A.2020 年房地产行业平均工资最接近全国年平均工资水平

B.2020 年城镇非私营单位就业人员最高与最低行业年平均工资之比为 3.64

C.2020 年只有东部地区城镇非私营单位就业人员年平均工资超过全国平均水平

D.2020 年信息传输、软件和信息技术服务业行业年平均工资超过全国平均水平的 2 倍

（十三）

2021 年 1～12 月 Z 国茶叶出口数量为 324955 吨，同比增长 7.8%，2021 年 1～12 月 Z 国茶叶出口额为 1381741 千美元，同比增长 8.6%，其中 2021 年 1～6 月累计出口 150549 吨，出口金额为 617946 千美元，同比下降 0.3%。

2021 年 1~12 月 Z 国茶叶出口量统计

月份	数量（吨）	金额（千美元）	数量同比（%）	金额同比（%）
1 月	25324	108901	-14.1	-8.6
2 月	26247	103090	77	71.3
3 月	19068	80767	-21.9	-21.9
4 月	25061	96230	-12.5	-11.5
5 月	25828	110525	-6.3	-6.7
6 月	29021	118433	12.1	7.8
7 月	23990	103335	-13.8	-15.1
8 月	27903	121087	14.6	13.6

9 月	27554	125833	23.6	34.3
10 月	27853	120887	25.1	27.6
11 月	29281	134085	17.6	14.8
12 月	37825	158568	30.2	34.1

1.2020 年 1～12 月，Z 国茶叶出口数量约为（　　）。

A.302354　　B.301442　　C.299656　　D.299222

2.2020 年 7～12 月，Z 国茶叶出口金额约为（　　）千美元。

A.652516　　B.654375　　C.761936　　D.763795

3.根据上述材料，下列说法不正确的是（　　）。

A.2021 年 1～12 月，Z 国茶叶出口金额最少的是 3 月

B.2021 年 1～12 月，Z 国茶叶出口数量最多的是 12 月

C.2021 年 1～12 月，Z 国茶叶出口数量同比增长最多的是 2 月

D.2021 年 1～12 月，Z 国茶叶出口金额同比增长最少的是 4 月

4.2021 年 1～12 月，Z 国茶叶出口量统计表中，数量同比和金额同比都增长的月份有（　　）个。

A.5　　B.6　　C.7　　D.8

5.根据上述资料，下列说法正确的是（　　）。

A.2021 年 1～12 月，Z 国茶叶出口数量超过 25000 吨的月份有 9 个

B.2021 年 1～12 月，Z 国茶叶出口金额超过 100000 千美元的月份有 8 个

C.2021 年 1～12 月，Z 国茶叶出口数量同比增速从高到低排序，6 月排第 7 位

D.2021 年 1～12 月，Z 国茶叶出口金额同比增速从高到低排序，11 月排第 4 位

（十四）

2020 年全国城镇私营单位分行业就业人员年平均工资及其同比增速

单位：元，%

行业	2020 年	2019 年	增长速度
合计	57727	53604	7.7
农、林、牧、渔业	38956	37760	3.2
采矿业	54563	49675	9.8
制造业	57901	52858	9.6
电力、热力、燃气及水生产和供应业	54268	49633	9.3
建筑业	57309	54167	5.8
批发和零售业	53018	48722	8.8
交通运输、仓储和邮政业	57313	54006	6.1
住宿和餐饮业	42258	42424	-0.4
信息传输、软件和信息技术服务业	101281	85301	18.7
金融业	82930	76107	9
房地产业	55759	54416	2.5

租赁和商务服务业	58155	57248	1.6
科学研究和技术服务业	72233	67642	6.8
水利、环境和公共设施管理业	43287	44444	-2.6
居民服务、修理和其他服务业	44536	43926	1.4
教育	48443	50761	-4.6
卫生和社会工作	①	57140	6.2
文化、体育和娱乐业	51300	49289	4.1

1.填入表格中①处的数据为（　　）。

A.68083　　B.66083　　C.60683　　D.63086

2.下列行业中，2020 年全国城镇私营单位分行业就业人员年平均工资变化幅度最大的是（　　）。

A.信息传输、软件和信息技术服务业

B.水利、环境和公共设施管理业

C.教育

D.批发零售业

3.表中列出了 2020 年全国城镇私营单位 18 个行业的就业人员年平均工资，这组数据的中位数是（　　）元。

A.54783　　B.55161　　C.55237　　D.55713

4.2019 年，全国城镇私营单位部分行业就业人员年平均工资在 5-6 万元之间，这些行业就业人员年平均工资的平均值约为（　　）元。

A.53862　　B.54103　　C.54275　　D.54371

5.根据以上资料，下列说法正确的有（　　）个。

①2018 年，全国城镇私营单位各行业就业人员中，年平均工资最高的是金融业

②2019 年，全国城镇私营单位教育行业就业人员年平均工资首次突破 5 万元

③2020 年，全国城镇私营单位各行业就业人员年平均工资普遍增长了 1000 元左右

A.0　　B.1　　C.2　　D.3

（十五）

2021 年，脱贫县农村居民人均可支配收入 14051 元，比上年增长 11.6%，增速比全国农村快了 1.1 个百分点。其中，人均工资性收入 5129 元，增长 15.4%，增速比全国农村快 1.3 个百分点，人均经营净收入 4791 元，增长 9.1%，增速比全国农村快 1.1 个百分点，人均转移净收入 3929 元，增长 10.1%，增速比全国农村快 2.6 个百分点。从收入结构看，工资性收入仍是脱贫县农村居民第一收入来源，占比为_____。

2021 年脱贫县农村居民人均消费支出 12311 元，比上年名义增长 14.4%。其中，衣食消费支出较快增长，人均食品烟酒消费支出 4206 元，增长 15.8%；人均衣着消费支出 696 元，增长 18.5%。居住及生活用品支出稳定增长，生活质量稳步提高，人均居住消费支出 2453 元，增长 7.1%；人均生活用品及服务消费支出 697 元，增长 11.1%。发展型消费支出稳步恢复，人均交通通信、文教娱乐、医疗保健消费支出分别为 1436 元、1409 元和 1208 元，分别增长 13.9%、24.9%和 13.8%。

1.2020 年，脱贫县农村居民人均可支配收入均为（　　）元。

A.12450　　B.12483　　C.12591　　D.12638

2.2021 年，全国农村居民人均经营净收入增速较人均转移净收入增速高多少个百分点?

（　　）

A.0.2　　B.0.3　　C.0.4　　D.0.5

3.根据资料内容依次填入画线部分，最合适的一项是（　　）。

A.工资性收入 36.5%　　B.工资性收入 34.1%

C.经营净收入 34.1%　　D.转移净收入 28.0%

4.2021 年脱贫县农村居民人均食品烟酒消费支出的增加值约为（　　）元。

A.534　　B.548　　C.563　　D.574

5.以下说法中，能从上述资料中推出的有（　　）个。

①2020 年，经营净收入是贫困县农村居民第一收入来源。

②2021 年，脱贫县农村居民人均衣着消费支出增加值大于人均生活用品及服务消费支出。

③2020 年，脱贫县农村居民发展型消费支出占比最大的是文教娱乐。

A.0　　B.1　　C.2　　D.3

（十六）

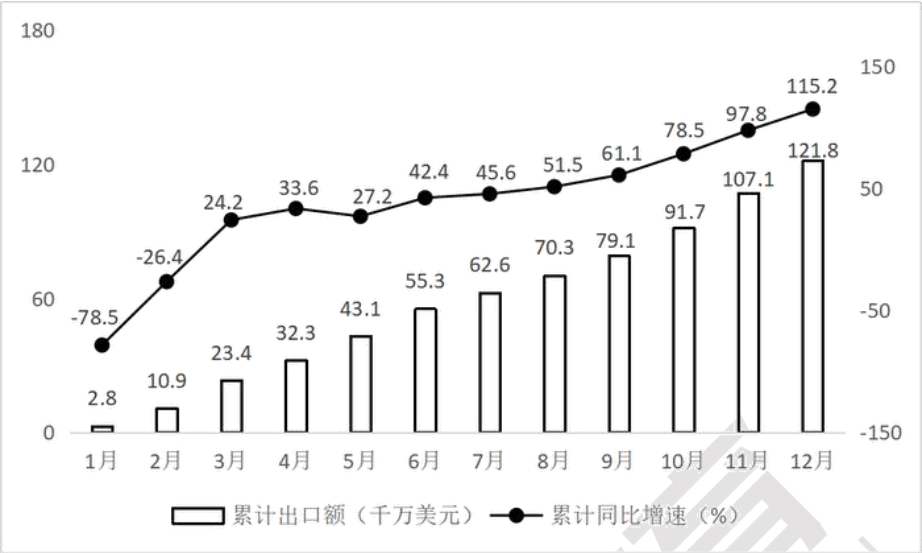

图 1 2021 年 S 国对外国家间、国际组织无偿援助和赠送的物资情况

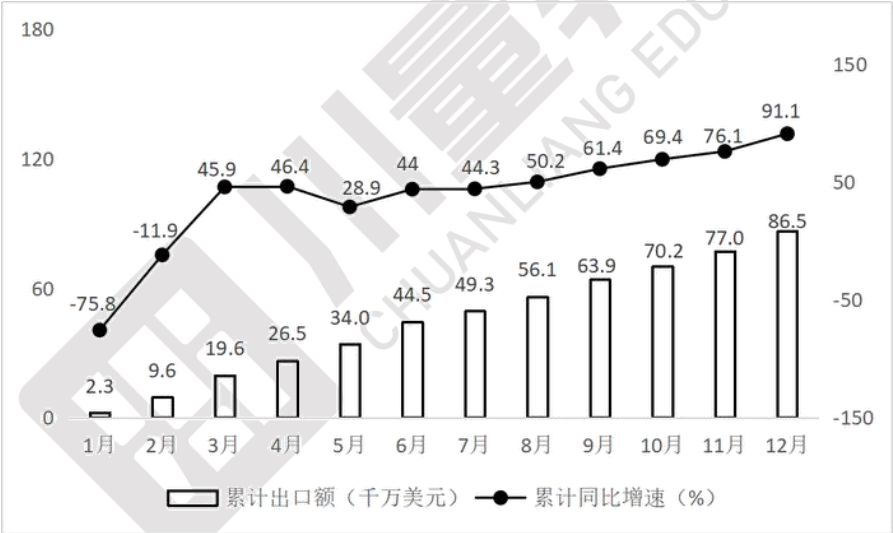

图 2 2021 年 S 国国有企业对外国家间、国际组织无偿援助和赠送的物资情况

1.2020 年全年 S 国对外国家间、国际组织无偿援助和赠送的物资出口额在以下哪个范围内？（　　）

A.不到 5 亿美元　　B.5 亿美元 10 亿美元之间

C.10 亿美元 15 亿美元之间　　D.超过 15 亿美元

2.2021 年 S 国对外国家间、国际组织无偿援助和赠送的物资出口额超过 1 亿美元的月份有几个？（　　）

A.4　　B.5　　C.6　　D.7

3.2021 年 S 国国有企业对外国家间、国际组织无偿援助和赠送的物资出口额最高的月份与最低的月份相差多少千万美元？（　　）

A.4.9　　B.5.7　　C.8.2　　D.10.4

4.2020 年第二季度 S 国国有企业对外国家间、国际组织无偿援助和赠送的物资出口额与第一季度相比（　　）。

A.增加了不到 1 亿美元　　B.增加了 1 亿美元以上

C.减少了不到 1 亿美元　　D.减少了 1 亿美元以上

5.2021 年，S 国对外国家间、国际组织无偿援助和赠送的物资来自国有企业的比重最低的季度是（　　）。

A.第一季度　　B.第二季度　　C.第三季度　　D.第四季度